භූගෝල විද්‍යාව II

I කොටස - භෞතික භූගෝල විද්‍යාව

I කොටස - භෞතික භූගෝල විද්‍යාව

1. (i) ලෝකයේ ග්ලැසියර පිහිටි ප්‍රධාන ප්‍රදේශ **හතරක්** නම් කරන්න.

1. කඳු ග්ලැසියර
   හිමාලය කඳු, ඇඩීස් කඳු, රොකී කඳු, ඇල්ප්ස් කඳු, ඇල්ප්ස් කඳු , යුරල් කඳු , ඇලස්කාව හා නවසීලන්තයේ දකුණු ඇල්ප්ස් යන ප්‍රදේශ
2. මහාද්වීපික ග්ලැසියර
   ඇන්ටාක්ටික්, ආක්ටික්, ග්‍රීන්ලන්තය, අයිස්ලන්තය, සහ සයිබීරියාව යන ප්‍රදේශ
   (මෙහිදී ප්‍රදේශ හතරක් පිළිතුරට ඇතුළත් කළ හැකිය)

(ලකුණු 1/2 x 4 = 02)

(ii) නිමින ග්ලැසියර ප්‍රදේශවල ඛාදනය සිදුවන ආකාර **තුන** කොටියෙන් විස්තර කරන්න.

ඛාදනය වන ආකාර තුනකි.

1. උත්පාටනය
2. උල්ලේඛය
3. පිරිසැරීම

1. උත්පාටනය

උත්පාටනය යනු පාෂාණ කුට්ටි ගැලවී යෑමයි. කඳුපැතිවල ඇති විවර තුළ ජලය පිරී යද්දී මිදුණු විට ජලයේ පරිමාව වැඩි වී ඉහළ යෑම නිසා පාෂාණ කුස්තුර කැබලි ගැලවී ග්ලැසියරයට එකතු වේ.

2. උල්ලේඛය

ග්‍රීෂ්ම සෘතුවේ දී ග්ලැසියර් දිය වී යෑම නිසා පාෂාණ කැබලි ගැලවී යයි. මෙසේ පාෂාණ කැබලි හා සුන්බුන් සමඟ ග්ලැසියරය දිවෙන්ට ලෙස පහළ නිම්නවලම තල්ලු වී යෑමේ දී පාෂාණ සිරි මඳු වීම හා ඔප මට්ටම් වීම උල්ලේඛය යි.

3. පිරිසැරීම

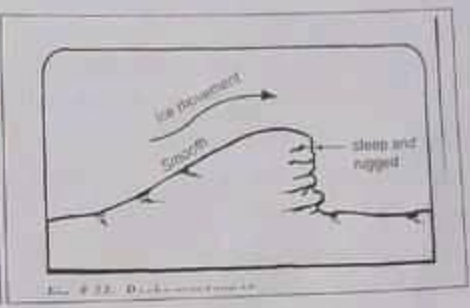
අයිස් සමඟ මිදී ඇති ගල්කුට්ටි, ගල්කැට සහ වැලි ඒවායේ බර නිසා තෙරපීමේ සිදු වන අතර ඒවා බෑවුම් අස්සේ පහළට තල්ලු වී යෑමෙන් සිදු වන ඛාදනය පිරිසැරීමයි. මේ මගින් පාෂාණ මත ඇලි වැනි දිගැහි සිරිම ලක්ෂණ දකිය හැකියි.

(ලකුණු 02 x 3 = 06 යි)

(iii) කොළුගිරිය ග්ලැසියර් ප්‍රදේශවල බෑදුන ස්ථාවර භූමියේ නිර්මාණය වන ආ රාජ **අතර** පුරුෂ රූප පවසන් කෙනෙකුට පෙන්වෙන් පැහැදිලි කරන්න.

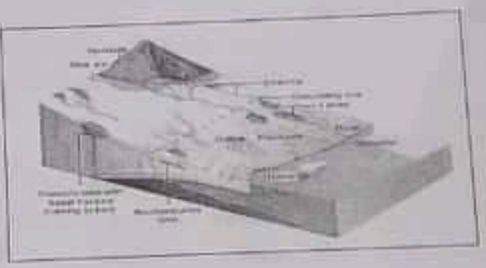
1. මෙසේ මුහුණත්වෙන්

ග්ලැසියර් ගලායෑම නතියේ බෑදුන වී අවමෙමිය තැවරුණේ කෙමෙන් නිර්මාණය වන යටි පාෂාණ අවමෙමු වූ තත්ත්වයි. එහි එක් පැත්තක එනම් ග්ලැසියර් ගලා එන මුහුණත දිගාවේ පුරාව මැවුමියන් සහිත මිදු බැවුමක් ද ග්ලැසියර් මුවාවේ දැඩි රළු සහ අවධිමත් බැවුමක් ද පවතී.



2. භූතාපැස්ස

අවට කැණ්පත්ව ඇති ග්ලැසියර්වලින් ගල් තුළේ හෝ කන්දක් හෝ කදු වැටියක් අතලට පෙරා ඇති අවස්ථාවක එය භූතාපැස්ස ලෙස හැඳින්වේ. එහෙත් එම මූලික අධිත්වලින් ආවරණය වී නොකැත.



3. පියෝඩ් අවරණ

දිස්සූ සහ පසු එකතුම දැඩි බැවුම්වලින් වටවූ කඩතොර සහිත වෙරළාසන්න තිබීන පියෝඩ් වෙරළ ලෙස හැඳින්වේ. ග්ලැසියර්වලින් කිරිණෙය වූ වවැනි තිබීනවල පැවැති ග්ලැසියර් දියවීම නිසා U හැඩයේ හැකිරූ තිබීන දක්නට ලැබේ.



4 විශේෂ ප්‍රාන්ත හෙළ (Crag and Tail)

අවට ඇති වෙහෙස් උස් තිබීවලින් වෙන්ව පවතින දුරකලා වූ පාෂාණමය කන්දකි වඩා සන්තිසේ පාෂාණ මත දළ බැවුම් සහිතව උස්වූ කදු සිඛරයක් නිර්මාණය වන අතර වඩා ප්‍රවිල පාෂාණ සහිත ප්‍රදේශයෙහි තන්හේ හෙළවර පාෂාණය වේ.



(ලකුණු 01 + 01 + 02 x 03 = 06 යි)

(iv) සහසම්බන්ධිත ග්ලැසියර භූදර්ශවල නිධිකරණය මගින් නිර්මාණය වන භූ රූප **තුනක්** සඳහන් රූප සටහන් සහිතව කෙටියෙන් පැහැදිලි කරන්න.

1. ඩ්‍රම්ලින් (බිදුරුපැලි)

ග්ලැසියර් අවසාදිත වීම නිසා නිර්මාණය වන දිගට සෑදූ ලෙස ඩ්‍රම්ලින සමූහ සැකිල්ල ඩ්‍රම්ලින සමූහයක් එක්ව ගත් කළ එය බිත්තරයක් ලෙස ද හැඳින්වේ. ඩ්‍රම්ලිනයක් කිලෝමීටරයක් පමණ දිගින් ද මීටර 500ක් පමණ පළලින් ද පුළුන්නවේ. එහි වැලි සහ මැටියෙන් සංයුක්ත වශයෙන් නැන්පස්ව තිබේ.

2. එස්කර්

ග්ලැසියර් අවසාදිත වීම නිසා නිර්මාණය වන වටු දිගටි සහ ඇද හැලුනු පැවැති ග්ලැසියරයක වලනය නැවතීමෙන් පසුව එස්කර් නිර්මාණය වන බව පිළිගැනේ. එස්කරද වැලි සහ මෙයරව නැන්පස්ව තිබේ.

3. ගස්ම

දියවන ග්ලැසියරයකින් එසකුවන සුන්ඛුන්වලින් හෝ ග්ලැසියර් බලයෙමෙහි ප්‍රතිඵලයක් ලෙස ඩෙල්ටාවක් වශයෙන් හෝ කේම නිර්මාණය වේ.

4. කේතල (කැබලි)

දියවන ග්ලැසියර් අයිස් භූමියේ අවපාතයකට ගලායෙමෙන් හා එහි තැන්පස් වීමෙන් කේතල නිර්මාණය වේ. භූගත ජල මට්ටම ඉහළ නම් මෙම කේතල ජලයෙන් පිරීයෙමෙන් විල් බවට පත්වේ.

5. වාර්ව

ග්ලැසියර් විල්වල වාර්ෂිකව නැන්පත්වන තුනී අවසාදිත ස්තර යුගල වාර්ව ලෙස සැලකේ. එය ග්ලැසියර් ක්‍රියාකාරීත්වයෙහි සාතුමය වශයෙන් ඇතිවන වෙනසවීම් අනුව සිදුවන්නකි.

6. බිහිනැන්න

දියවන ග්ලැසියර්වලට ඉදිරිපසින් ඇති භූමිය බිහිනැන්න ලෙස හැඳින්වේ. ග්ලැසියර්වලින් ඔබා හැරෙන වැලි බොරළු සහ මඩ තැන්පස් වන්නේ මෙම බිහිනැන්නෙහිය.

7. අක් මොරේන

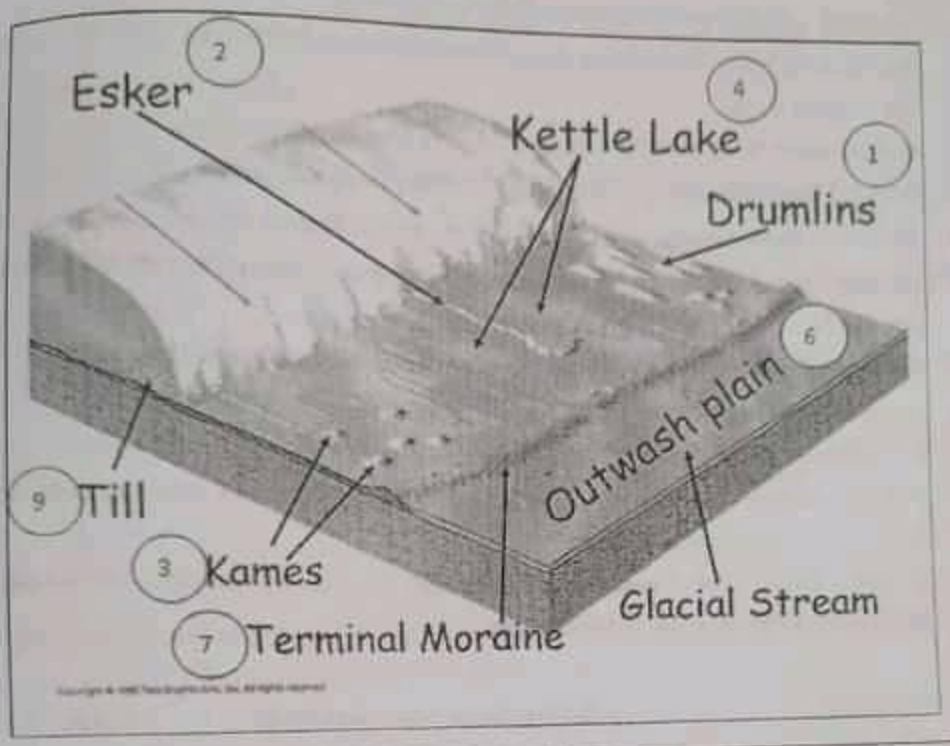
ග්ලැසියර්වලින් රැගෙන එන සියළු දෑ එකතු වීමෙන් ග්ලැසියරයක ගලායෙම සීමා කළ හැකිය.

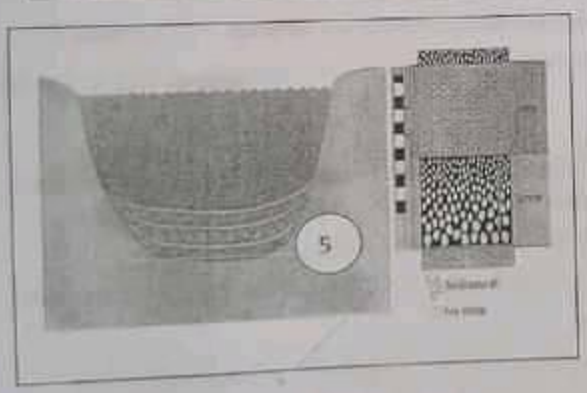
8. අගමගල්/අගම් කුටිටි


ග්ලැසියර්වලින් රැගෙන එන ගල් සහ පාෂාණ ග්ලැසියරය දියවීමෙන් පසු ඔක්කෝම අගමගල් හෙවත් අගම් කුටිටි ලෙස සැලකේ. එලෙස බෙනෝ දුර සිට රැගෙන එන දෑ එම පරිසරයට ආගන්තුක ඒවා වේ.

9. අසුරුමැටි/ ගල් සහ මැටි මිශ්‍රිත නිධි

ග්ලැසියර් අයිස්වලින් ඇති කෙරෙන තවත් නිධිභාධනයක් වන්නේ අතුරුමැටි හෙවත් ගල් සහ මැටි මිශ්‍රිත නිධි වේ. ග්ලැසියර්කරණයට ලක්වූ පහත් බිම් ප්‍රදේශවල විශාල ලෙස මෙම නිධි පවතී.







(ලකුණු 01 + 01 = 02 X 3 = 06යි)

2. (i) කෙපත්ගේ ලෝක දේශගුණික වර්ගීකරණයෙහි ප්‍රධාන දේශගුණ වර්ග **හතරක්** අදාළ අක්ෂර සහිතව නම් කරන්න.

A නිවර්තන දේශගුණ වර්ගය

B වියළි දේශගුණ වර්ගය

C උණුසුම් සෞම්‍ය දේශගුණ වර්ගය

D ශීත දේශගුණ වර්ගය

E ධ්‍රැව දේශගුණ වර්ගය

(ලකුණු 1/2 × 4 = 02යි)

(iii) ශ්‍රී ලංකාවේ කෘත්‍රිම තෙත්බිම් නිසා ඇතිවී තිබෙන පාරිසරික ගැටලු **අනක්** කෙටියෙන් පැහැදිලි කරන්න.

1. ලේවා
2. ඉදිකළ ජලාශ
3. කෘෂි බිම් (කුඹුරු)
4. කැණීම් වලවල්

පාරිසරික ගැටලු

1. ස්වාභාවික වනාන්තර ක්ෂය වී යාම
2. තෙත් බිමවල වැදගත්කම නොසලකා භාවිතයට ගැනීම, ගොඩ කිරීම, හා කැණීම් නිසා විශාල වලවල් සෑදීම
3. එම වලවල් අනාරක්ෂිත වීම, මදුරුවන් බෝ වීම වැනි සෞඛ්‍යය ආශ්‍රිත ගැටලු ඇතිවී
4. ලේවා ආශ්‍රිත පස නිසරු වීම.

(ලකුණු 02 × 3 = 06)

(iv) කෘත්‍රිම තෙත්බිම් ආශ්‍රිත පාරිසරික ගැටලු අවම කිරීම සඳහා ශ්‍රී ලංකා රජය විසින් ගෙන ඇති ක්‍රියාමාර්ග **අනක්** පැහැදිලි කරන්න.

1. පරිසර හිතකාමී අදහස් හා ආකල්ප වර්ධනය,
2. අධ්‍යාපනය ලබා දීම තුළින් පාරිසරික හානිකර තත්වයන් වළක්වා ගැනීම,
3. නීති රීති පැනවීම,
4. පරිසර හානි සිදුකරන්නන්ගට නීත්‍යානුකූලව දඩුවම් ලබා දීම,
5. කෘතිම තෙත්බිම් ආශ්‍රිත මානව ක්‍රියාකාරකම් සිරසර අයුරින් පවත්වාගෙන යාම.

(ලකුණු 02 × 3 = 06)

(ii) සෞම්‍ය කලාපීය විකාශන්කර බියෝමයෙහි හෝ මධ්‍යධරණී වන ලැහැබ බියෝමයෙහි ප්‍රධාන ගති ලක්ෂණ **තුනක්** කෙටියෙන් විස්තර කරන්න.

සෞම්‍ය කලාපීය විකාශන්කර බියෝමය

1. ව්‍යාප්තිය (අක්ෂාංශීය) - අර්ධ ගෝල දෙකේම අක්ෂාංශ 30^0 - 60^0 අතර විහිදේ. උතුරු ඇමරිකාවේ නැගෙනහිර ප්‍රදේශය, යුරෝපයේ උතුරු සහ මධ්‍යම ප්‍රදේශ, දකුණු ඇමරිකාවේ බටහිර වෙරළ ආසන්න ප්‍රදේශය.
2. දේශගුණය - පැහැදිලි සෘතු භේදයක් පවතී. උෂ්ණත්වය ඒකාකාර නොවේ. එය 15^0C වේ. 750 - 1500 mm පමණ වර්ෂාපතනයක් ඇත. වර්ෂාපතනය අඩු වුවද ශාඛ වැඩීමට ප්‍රමාණවත්ව පස ඉතා සාරවත්ය.
3. වෘක්ෂලතා ලක්ෂණ - බොහෝ ශාඛ පත්‍රශීලීය, සදාහරිත ශාඛ ද ඇත. ප්‍රමුඛ ශාඛයන්හි උස මීටර 25 -30 පමණ වේ. යම් ප්‍රමාණයක ස්ථරායනයක් ඇත. සෘතු අනුව ශාඛවල ස්වරූපය වෙනස් වේ. ශීත සෘතුවේදී ශාඛ පත්‍ර හැලේ.
4. සත්ව විශේෂ - අලුකානු මී හරකා, මුවා, නරියා, ඉන්නෑවා, පරෙවියා, දඩුලේනා
5. ශාඛ විශේෂ - ඕක්, බීච්, බර්ච්, ප්ලේ, එල්ම්

මධ්‍යධරණී වන ලැහැබ බියෝමය

1. ව්‍යාප්තිය (අක්ෂාංශීය) - සෑම මහද්වීපයකම වෙරළබඩ සීමිත ප්‍රදේශවල දක්නට ඇත. යුරෝපයේ සහ උතුරු අප්‍රිකාවේ මධ්‍යධරණී මුහුදු අවට ප්‍රදේශයේද, උතුරු ඇමරිකාවේ කැලිෆෝර්නියා, දකුණු ඇමරිකාවේ බටහිර වෙරළබඩ ප්‍රදේශය, දකුණු අප්‍රිකාවේ කේප්ටවුන් ආශ්‍රිත ප්‍රදේශය සහ ඕස්ට්‍රේලියාවේ පර්ත් සහ ඇඩිලේඩ් ප්‍රදේශවල පවතී.
2. දේශගුණය - උණුසුම් වියලි දේශගුණයක් පවතී. ග්‍රීෂ්මයේ උෂ්ණත්වය 26.6^0 - 32.2^0 C සහ සිසිරයේ උෂ්ණත්වය 10^0 C ක වෙනසක් පවතී. වර්ෂාපතනය මි.මී. 762 ට අඩුවන අතර රිද්මයානුකූල වර්ෂාපතනයක් ලැබේ.
3. වෘක්ෂලතා ලක්ෂණ - ගිම්හාන නියඟයට මුහුණදීමට අනුවර්තනයක් ඇත. ශාඛ පත්‍ර කුටු සහිතය. පත්‍ර ඉටි වලින් හෝ දුම්මලෙන් වැසී ඇත. සන පොත්ත හා ගැට සහිත කඳන් පවතී.
- ක විශේෂ - යුකැලිප්ටස්, සිඩර්, ඕක්, ඔලිව්, ටියුලිප්, දේවදාර, පයින්, රෝස්මරි, චන්ඩර්
- ව විශේෂ - මුවා, කුරුළු වර්ග, වෘක විශේෂ, ඩින්ගෝ (වල් බල්ලන්)

(ලකුණු 02 x 3 = 06)

(c)භූමිකම්පා	මිනිස් ජීවිත අහිමිවීම, සහ ශාරීරික පීඩාවන්ට ලක්වීම	නිවාස ඉඩම් ව්‍යාපාරික ගොඩනැගිලි හා දේපල විනාශවීම	මහාමාර්ග දුම්රිය මාර්ග සහ නල මාර්ග වැනි යටිතල පහසුකම්වල ව බිරපසල ලෙස හානි පැමිණීම	නිෂ්පාදන මාධ්‍ය විනාශවීම සහ ඒවා ප්‍රතිසංස්කරණ යට යොදා ගැනෙන සම්පත් විනාශ වීම	භූමිකම්පා සිදුවන විකවාතුවේ දී මිනිසුන්ගේ අසාමාන්‍ය කළබැලය, සම්පත භූමියෙන් පැහැයෑම, ජනේලවලින් ඉවතට පැනීම, දිවි ලෙස බියට පත්වීම නිසා සිදුවන අනතුරු

(ලකුණු 02 × 3 = 06යි)

(iv) ආපදා කළමනාකරණ චක්‍රයෙහි පෙර-සූදානම් අවධිය සඳහා ශ්‍රී ලංකාවේ ආපදා කළමනාකරණ මධ්‍යස්ථානය විසින් ගෙන ඇති පියවර **තුනක්** සාකච්ඡා කරන්න.

1. ජාතික ආපදා කළමනාකරණ සැලසුම් සහ ජාතික හදිසි මෙහෙයුම් සැලසුම් සම්පාදනය කිරීම.
2. පළාත්වල, දිස්ත්‍රික්කවල, පළාත් පාලන ආයතනවල, ප්‍රාදේශීය සහ ග්‍රාම නිලධාරී මට්ටමින් ආපදා පෙර සූදානම් සහ ප්‍රතිචාර දැක්වීමේ සැලසුම් සකස් කිරීම සහ අධීක්ෂණය.
3. හදිසි අවස්ථාවන්හිදී රෝහල් ගත කිරීම සඳහා සෞඛ්‍ය බලධාරීන් සමඟ සම්බන්ධීකරණය වීම.
4. පාසල් ආපදාවලින් සුරක්ෂිත කිරීමේ වැඩසටහන් ක්‍රියාත්මක කිරීම සඳහා සහාය වීම.
5. හදිසි අවස්ථා සඳහා ප්‍රතිචාර දැක්වීමට පළාත් පාලන ආයතන සවිබලගැන්වීම.
6. සුළිසුලං ගංවතුර නායයෑම් වැනි විවිධ ව්‍යසනයන්ට ප්‍රතිචාර දැක්වීමේ සැලසුම් සම්පාදනය.
7. විවිධ ව්‍යසන හේතුවෙන් අවදානම් සහගත තත්ත්වයට පත්ව ඇති ප්‍රජාවන් හඳුනාගැනීම සහ ආපදා කාල සීමාව තුළ ජනතාවගේ ආරක්ෂාව තහවුරු කිරීම.
8. ආපදා කළමනාකරණ කමිටු පත් කිරීම
9. ආපදා කළමනාකරණ ව්‍යසන අවදානම් සහගත තත්ත්වයන් පිළිබඳ දැනුවත් කිරීම.
10. ආරක්ෂිත ස්ථාන ආරක්ෂිත මාර්ග පෙන්නුම් කෙරෙන ව්‍යසන සිසියම් සකස් කිරීම.
11. පෙරහුරු වැඩ සටහන් ක්‍රියාත්මක කිරීම

(ලකුණු 02 × 3 = 06යි)

4. (i) රියෝම්වල චෙනස්කම් හඳුනාගැනීමට ඉවහල්වන සාධක **හතරක්** නම් කරන්න.

1. වාතාශ්‍රය (අක්ෂාංශය)
2. දේශගුණය
3. වෘක්ෂලතා ලක්ෂණ
4. ගොඩ විශේෂ
5. සත්ව විශේෂ

(ලකුණු 0.5

3. (i) 'ජීවාණුවක උපදුවය' සහ 'ආපදාව' යන වෙනස්වලින් අදහස්වන්නේ කුමක් ද?

ජීවාණුවක උපදුවය	ආපදාව
ජීවාණුවක ක්‍රියාවලින් පෙත්තවට හෝ දේපළවලට හා පරිසරයට හානියක් සිදු වීම සඳහා සංවිධිතයක් උපදුවයකි.	උපදුවයක් මිනිස් ජීවිතයට, දේපළවලට හා පරිසරයට හානි සිදු වන අනුපිළිවෙල සමඟ වීම ආපදාවකි.

(උපකල්පිත 01 + 02 = 03 ලකුණු)

(ii) පහත දැක්වෙන ජීවාණුවක උපදුවවලින් කිහිපය **එකක** සැකිලෙහෙහන ලක්ෂණ **අවම** වශයෙන් කරන්න.

(a) ගංවතුර (b) නායයෑම් (c) තුම්පහිපා

ජීවාණුවක උපදුව	ජීවාණුව සැකි පෙහෙහන ලක්ෂණ
(a) ගංවතුර	1. ලෝකයේ නිරතුරුව ඇති වන ආපදාවකි එය කිසිවිට අකාරයකට මිදී හැරී.
	a. ගංගාවක ධාරයේ ගලන ජලයේ මට්ටම ඉහළ ගොස් එම ජලය ගංගා තීරය දෙපස ප්‍රදේශයට ගලා යාම.
	b. ජල කාරිය අවහිර වීම නිසා තාවකාලික ප්‍රදේශවල ඇති වන ජල බැලීම.
	c. සුළි සුළං හා වඩදිය පවතින අවස්ථාවල දී මුහුදු ගොඩ බැලීම නිසා ඇති වන ජල බැලීම.
	2. ලෝකයේ ගංවතුර උපදුව බහුලව ඇතිවන ගංගා තීරය වේ.
	3. ජීවාණුවක උපදුවයක් වන ජල බැලීම ආපදාවක් බවට පත් කර දෙ ලබන්නේ මිනිසා විසිනම ය.
	4. ගංගා ආශ්‍රිත පාසල් ඔබ ගොඩ කිරීම, උපදුව පිළිබඳ පොදෙනුවත්වීම, දරිදුකාල හා අනාවැකි ඉදි කිරීම අදිය නිසා ජල බැලීම ආපදාව වී වේ.
	5. ගං ඉවුර ආශ්‍රිත මානව ක්‍රියාකාරකම් ජල බැලීම සඳහා ප්‍රබල වී බලපායි.
(b) නායයෑම්	1. ගුරුත්ව බලය නිසා කඳු බැවුම් හෝ බුරුල් පසින් යුත් ප්‍රදේශයක බිම් පොදෙස් ඔස්සේ පස්, පාෂාණ හා වෙනත් ද්‍රව්‍ය පහළට ගලා බැසීම නායයෑමක් ලෙස හැඳින්විය හැකිය.
	2. නායයෑම් සඳහා හොඳින් මෙන්ම මාසුණ හේතු ද බලපායි.
	3. හොඳින හේතු ලෙස විවිධාපදාන හිඳුනාව, භූ විද්‍යාත්මක පත්තිය.

	ගුම්කමිටා වත සහ තුවක පිලිය, පාෂාණවල ස්වභාවය, පාෂාණ කීඩාව සහ බෑවුම් අනුක්‍රමණය යන සාධක සැලකිය යුතු.
	4. මාසුම කියාකාරකම් වලින් අවධානයෙන් අවම පරිහරණය, විනාශකාරී විකාශ සිදීම, ස්වභාවික පරිසර ආරක්ෂිත කිරීම, පසුබැසීම උත්තේජිත පිලිය රැදවීම සහ විසිරවීම වැනි ලිහා සැලකේ.
(c) ගුම්කමිටා	1. ගුම්කමිටා ලෙස්සෙන් තු කැටි කැවීම අඛණ්ඩව ඔහුල ව සඳහනාත්ත කැති ස්වභාවික සංසිද්ධියකි.
	2. පාවිච්චි කෘෂිකාර්මික කටයුත්ත ව නිවෙසින ගන්නිය විශේෂයෙන් වී කැබැලි කැවීම ඔස්සේ ඇතිවන හදිසි වලහය හෝ ගැස්සීම හෝ ගුම්කමිටාවල දී සිදුවන ක්‍රියාවලියයි.
	3. ගුම්කමිටා කලාප සඳහනාත්ත නිසිඉණ්ද රිය සිහම ස්වභාවය, නිහඬ අවස්ථාවකදී, සිදු වේ දැයි අනාවැකි පුකාශ කිරීමට තවම හොඳකි වී ඇත.
	4. ගුකම්පනයක ප්‍රබල බව අනුව සිදු වන අනතුරෙව් තරම වෙනස් වේ.
	5. එය සිදු වන ප්‍රදේශයේ ජනාධික බව හා කාර්ය සංවේදීභාවය අනුව උපදවිය ආපදාවක් බවට පත් වන අතර, ආපදාවේ තීව්‍රතාව වැඩිවේ.

(02 x 3 = 06 ලි)

(iii) ඔබ ඉහත (ii) හි තෝරා ගත්තා ලද ස්වභාවික උපදවියෙන් මිනිස් පරිසරයට ඇති වලතාම **අනතුරු** පැහැදිලි කරන්න.

ස්වභාවික උපදවිය	මිනිස් පරිසරය කෙරෙහි ඇති වලතාම				
	මිනිස් ජීවිතය	පුද්ගලික දේපල	ගොඩනැගිලි	ජීවනෝපාය තැටම්	සමාජ ගැටළු
(a) සුනාමි	මිනිස් ජීවිත අහිමිවීම, සහ ගාරීරික පීඩාවන්ට ලක්වීම	නිවාස සුවම වශයෙන් කෙළෙසීම් සහ දේපල විනාශවීම	පත්තිවෙදන සම්බන්ධතා බිඳවැටීම, බලශක්ති සැපය තාවකාලික අඩාල විනාශවීම	කෘෂි කෙම්ත සහ සත්ව පාලනය විනාශවීම, සමාජ අර්ථික කටයුතු අඩාලවීම	ජලයෙන් සටහන්වන රෝග බිහිය කෙමෙහෙය පිරීමීම, සුසුදු වහසර්ගත අහිමිවී අවතැන්වීම
(b) නායයෑම්	මිනිස් ජීවිත අහිමිවීම, සහ ගාරීරික පීඩාවන්ට ලක්වීම	නිවාස සුවම වශයෙන් කෙළෙසීම් සහ දේපල විනාශවීම	සම්බන්ධතා බිඳවැටීම බලශක්ති සැපය තාවකාලික අඩාල විනාශවීම, පාසල් ජල සැපයුම අඩාලවීම	සංක්‍රමණවීම බිම් විනාශය වීම	සාමාන්‍ය ජන ජීවිතය විනාශවීම සහ අවතැන්වීම

දකුණට හෙන් තලාපය

වර්ෂය පුරා ව්‍යාප්ත වූ වර්ෂාපතනයක් දක්නට ඇත.

සාමාන්‍ය වාර්ෂික වර්ෂාපතනය මිලිමීටර් 3000ක් පමණය.

මිලි මීටර් 5000ට වැඩි වැස්ස ලැබෙන ප්‍රදේශ ද පවතී.

නිරිත දිග මෝසමෙන් හා සංවහන මඟින් අධික වැසි ලැබේ.

උතුරට හෙන් තලාපය

වැසි සිට සැප්තැම්බර් දක්වා සීමිත කාලයක් පවතී.

වෙයම දිග සහ ඔක්තෝබර් දිග පහත් බිම් අඩු වර්ෂාපතනයක් ලබයි.

(ii) නිරිත දිග මෝසම් සාතුවේදී ;

වටවල ගිනිගත්තේත්ත සහ තොර්ටන් ස්ලිප් වාර්ෂික වර්ෂාපතනයෙන් සියයට 65 ක් පමණ ලබයි.

නිරිත දිග කොටසෙහි අනෙකුත් කොටස් වාර්ෂික වර්ෂාපතනයෙන් සියයට 35 ක් සිට 65 අතර ප්‍රමාණයක් ලබයි.

රටේ අනෙකුත් ප්‍රදේශ වාර්ෂික වර්ෂාපතනයෙන් සියයට 10 ක් සිට 35 අතර ප්‍රමාණයක් ලබයි.

(ලකුණු 02 × 3 = 06යි)

(iv) ශ්‍රී ලංකාවේ හෙන් තලාපයේ ස්වාභාවික වෘක්ෂලතාවරණය කෙරෙහි නිරිත දිග මෝසම් වර්ෂාව බලපා ඇති ආකාරය නිදසුන් තුනක් ඇසුරින් පැහැදිලි කරන්න.

1. නිරිත දිග මෝසම් වර්ෂාපතනය මඟින් ඉහළ වර්ෂාපතනයක් ලැබෙන බැවින් හෙන් තලාපයේ පහත රට සහ මධ්‍යම ප්‍රදේශයේ නිවර්තන වර්ෂා වනාන්තර සහ සදාහරිත වනාන්තර පැතිරී ඇත.
2. හෙන් තලාපයේ වර්ෂය පුරා ව්‍යාප්ත වූ වර්ෂාපතනයක් දක්නට ඇත. මැයි - සැප්තැම්බර් කාලය තුළ උපරිම වර්ෂාපතනයක් ලබයි. වර්ෂාපතන ව්‍යාප්තිය සහ පැතිරුනු උෂ්ණත්වය නිසා සදාහරිත වැනි වනාන්තර දක්නට ඇත.
3. අධික වර්ෂාපතනය නිසා ශාක විවිධත්වය ඉහා ඉහළය. ශ්‍රී ලංකාවට ආවේණික වූ ශාක 100 - 140 අතර සංඛ්‍යාවක් වාර්තා වී තිබේ.
4. වනාන්තර විවිධත්වය ද ඉහළ මට්ටමක පවතී. වියළි කලාපීය ශාකවලට සාපේක්ෂව මෙම කලාපයේ ශාකවල අරපිරිවර ඉක්මිමක් නැත.
5. අධික වර්ෂාපතනය නිසා ඝන යටි වැස්මකින් යුක්තව වනාන්තර සැකසී ඇත.
6. ශාක ස්තරායනය ද මැනවින් නිරීක්ෂණය කළ හැකිය. ගස්වල කඳන් සෘජුවන අතර වර්ෂාපතන අභිරික්සයක් නිසා පාංශු හෙතෙමනය ආරක්ෂා වේ. ශාකවල වර්ධනයට එය උපකාරී වේ.

(ලකුණු 02 × 3 = 06යි)

(ii) කෙපෙන්ගේ ලෝක දේශගුණික වර්ගීකරණයෙහි ඔබ උගත් එක් වර්ගයක් තෝරාගෙන එහි කැපිපෙනෙන ලක්ෂණ **හතක්** විස්තර කරන්න.

A නිවර්තන දේශගුණ වර්ගය

1. වාසස්ථිය - සමකය ආසන්න පහළ අක්ෂාංශීය ප්‍රදේශවල
2. වසර පුරා පැහිරුණ ඒකාකාරී ඉහළ උෂ්ණත්වය (සාමාන්‍ය උෂ්ණත්වය 18^0 C තට වැඩිය) ඍතු සෘතුවක් නැත.
3. කැපී පෙනෙන වියළි සෘතුවක් නැත.
4. වාර්ෂික වර්ෂාපතනය ඉහළය. වර්ෂාපතන වාෂ්පීකරණය ඉක්මවා යයි.
5. නිවර්තන හෙත් දේශගුණය උප දේශගුණ වර්ග **හතකි.Af/ Am/ Aw**
6. නිවර්තන වර්ෂා වනාන්තර ප්‍රධාන වෘක්ෂලතා වේ. (විශාල කඳන් සහිත උස ගස්වලින් යුතු වනාන්තර)
7. නිවර්තන වර්ෂා වනාන්තරවල ෂෘක ස්තරායනයෙහි ස්තර හතරක් දක ගත හැකිය.
8. **Am** සහ **Af** දේශගුණ වර්ගවලට වඩා **Aw** හි වර්ෂාපතනය අඩුය. එහෙත් වසර පුරා වර්ෂාපතනය විචල්‍ය ව පවතී. වර්ෂාපතනය මි.මී. 600ට වඩා අඩුය.
9. නිවර්තන සැවානා දේශගුණයෙහි වාර්ෂික වර්ෂාපතනය මි.මී. 2500 - 5000 අතර වේ. එය වසර පුරා පැතිරුනු වර්ෂාවක් නේ.
10. ලෝකයේ සියයට 60කට ආසන්න ජනගහනයක් නිවර්තන සතුන්, සියයට 70 - 80 පමණ කෘෂි විශේෂ මෙම දේශගුණික කලාපයේ දක්නට ලැබේ.

A දේශගුණ වර්ගය තෝරාගැනීමෙහි ලකුණු 06

Af/ Am/ Aw වර්ගයක් තෝරාගැනීමෙහි ලකුණු 03

(ලකුණු 02 × 3 = 06 යි)

(iii) නිරිතදිග මෝසම් සෘතුවේදී ශ්‍රී ලංකාවට ලැබෙන වර්ෂාපතනයෙහි භූගෝලීය ව්‍යාප්ති රටාවේ ප්‍රධාන ගති ලක්ෂණ **හතක්** විස්තර කරන්න.

1. නිරිත දිග මෝසම් සුළං - මැයි සිට සැප්තැම්බර් තෙක් පවතී.
2. අන්තර් නිවර්තන අභිසරණ කලාපය දිවයිනට උතුරින් පිහිටා තිබීම නිසා දිවයිනට මෙම කාලයේ නිරිත දෙසින් සුළං හමා ඒම.
3. භූ විෂමතා ලක්ෂණ අනුව, මධ්‍යම කඳුකරයේ බටහිර බෑවුම්වලට අධික වැසි ලැබීම.
4. කඳුකරයේ නැඟෙනහිර ප්‍රදේශවල වර්ෂාපතනය සාපේක්ෂව අඩුය.

   නුවරඑළිය මි.මීටර් 1905

5. මධ්‍යම කඳුකරයේ බටහිර බෑවුම්වල උපරිම වර්ෂාපතනය අගයයන් කිහිපයක් පහත දක්වේ.

යටියන්තොට	මි.මීටර් 5259
වටවල	මි.මීටර් 5024
මාලිබොඩ	මි.මීටර් 5330

6. බටහිර බෑවුම්වලට සාපේක්ෂව මුනුදු තීරයට යන විට මද වශයෙන් වැස්ස අඩු වේ.

   කොළඹ මි.මීටර් 2423

   මධ්‍යකලාපීය අම්බලන්තොට යාපනය සහ මන්නාරමට නිරිත දිග මෝසම් සෘතුවෙහි අඩු වර්ෂාපතනයක් ලැබේ.

භූගෝල විද්‍යාව II

I කොටස - භෞතික භූගෝල විද්‍යාව

I කොටස - භෞතික භූගෝල විද්‍යාව

1. (i) ලෝකයේ ග්ලැසියර පිහිටි ප්‍රධාන ප්‍රදේශ **හතරක්** නම් කරන්න.

1. කඳු ග්ලැසියර
   හිමාලය කඳු, ඇඩීස් කඳු, රොකී කඳු, ඇල්ප්ස් කඳු, ඇල්ප්ස් කඳු , යුරල් කඳු , ඇලස්කාව හා නවසීලන්තයේ දකුණු ඇල්ප්ස් යන ප්‍රදේශ
2. මහාද්වීපික ග්ලැසියර
   ඇන්ටාක්ටික්, ආක්ටික්, ග්‍රීන්ලන්තය, අයිස්ලන්තය, සහ සයිබීරියාව යන ප්‍රදේශ
   (මෙහිදී ප්‍රදේශ හතරක් පිළිතුරට ඇතුළත් කළ හැකිය)

(ලකුණු 1/2 x 4 = 02)

(ii) නිමින ග්ලැසියර ප්‍රදේශවල ඛාදනය සිදුවන ආකාර **තුන** කොටියෙන් විස්තර කරන්න.

ඛාදනය වන ආකාර තුනකි.

1. උත්පාටනය
2. උල්ලේඛය
3. පිරිසැරීම

1. උත්පාටනය

උත්පාටනය යනු පාෂාණ කුට්ටි ගැලවී යෑමයි. කඳුපැතිවල ඇති විවර තුළ ජලය පිරී යද්දී මිදුණු විට ජලයේ පරිමාව වැඩි වී ඉහළ යෑම නිසා පාෂාණ කුස්තුර කැබලි ගැලවී ග්ලැසියරයට එකතු වේ.

2. උල්ලේඛය

ග්‍රීෂ්ම සෘතුවේ දී ග්ලැසියර් දිය වී යෑම නිසා පාෂාණ කැබලි ගැලවී යයි. මෙසේ පාෂාණ කැබලි හා සුන්බුන් සමඟ ග්ලැසියරය දිවෙන්ට ලෙස පහළ නිම්නවලම තල්ලු වී යෑමේ දී පාෂාණ සිරි මඳු වීම හා ඔප මට්ටම් වීම උල්ලේඛය යි.

3. පිරිසැරීම

අයිස් සමඟ මිදී ඇති ගල්කුට්ටි, ගල්කැට සහ වැලි ඒවායේ බර නිසා තෙරපීමේ සිදු වන අතර ඒවා බෑවුම් අස්සේ පහළට තල්ලු වී යෑමෙන් සිදු වන ඛාදනය පිරිසැරීමයි. මේ මගින් පාෂාණ මත ඇලි වැනි දිගැහි සිරිම ලක්ෂණ දකිය හැකියි.

(ලකුණු 02 x 3 = 06 යි)