සියලු ම හිමිකම් ඇවිරිණි/ (முழுப் பதிப்புரிமையுடையது)/ All Rights Reserved

මධ්‍යම පළාත් අධ්‍යාපන දෙපාර්තමේන්තුව
மத்திய மாகாண கல்வித் திணைக்களம்
DEPARTMENT OF EDUCATION - CENTRAL PROVINCE

අ.පො.ස (උ.පෙළ) පෙරහුරු පරීක්ෂණය - 2025

කෘෂි විද්‍යාව I	08	S	I	13 ශ්‍රේණිය	පැය දෙකයි

උපදෙස්:

- සියලු ම ප්‍රශ්නවලට පිළිතුරු සපයන්න .
- උත්තර පත්‍රයේ නියමිත ස්ථානයේ ඔබේ විභාග අංකය ලියන්න.
- උත්තර පත්‍රයේ දී ඇති උපදෙස් ද සැලකිල්ලෙන් කියවා පිළිපදින්න.
- 1සිට 50තෙක් එක් එක් ප්‍රශ්නයට (1), (2), (3), (4), (5) යන පිළිතුරුවලින් නිවැරදි හෝ ඉතාමත් ගැළපෙන හෝ පිළිතුර තෝරාගෙන, එය උත්තර පත්‍රයේ පසුපස දැක්වෙන උපදෙස් පරිදි කතිරයක් (X) යොදන්න.

1) වල් පැලෑටි "වැඩෙන පරිසරය" මත සිදු කරන වර්ගීකරණයේදී " මඩෙහි වැඩෙන " ආකාරයේ වල් පැලෑටියක් වන්නේ,

1. හිරාපලා 2. දියසියඹලා 3. දියගෝවා 4. මාරුක් 5. වල්කරාබු

2) ක්ෂුද්‍ර ප්‍රචාරණයේදී මුල් ඇද්දවීම අවධියේදී පෝෂක මාධ්‍ය සම්බන්ධව නිවැරදි ප්‍රකාශය වන්නේ,

1. රෝපණ මාධ්‍යයට සයිටොකයිනින් හෝර්මෝනය පමණක් යොදනු ලැබේ.
2. රෝපණ මාධ්‍යයට ඔක්සින් හෝර්මෝනය පමණක් යොදනු ලැබේ.
3. රෝපණ මාධ්‍යයට ඔක්සින් වැඩි සයිටොකයිනින් අඩු ප්‍රමාණවලින් යොදනු ලැබේ.
4. රෝපණ මාධ්‍යයට ඔක්සින් හා සයිටොකයිනින් හෝර්මෝන සමාන ප්‍රමාණවලින් යොදනු ලැබේ.
5. රෝපණ මාධ්‍යයට ඔක්සින් හෝ සයිමොකයිනින් හෝර්මෝන කිසිවක් එකතු නොකරයි.

3) පහතරට වියළි කලාපය සඳහා වඩාත් උචිත පාත්ති වර්ගය වනුයේ

1. ගිල් වූ පාත්ති 2. උස් වූ පාත්ති 3. සමතලා පාත්ති
4. ඇලි හා වැටි ආකාර පාත්ති 5. උස් වූ පාත්ති හා සමතලා පාත්ති

4) කෘෂි ඉඩම් වල බිම් සැකසීම සඳහා බිම් සැකසීමේ උපකරණ භාවිතා කරන අතර ඒවායින් සිදු කරන ක්‍රියාකාරකම් කිහිපයක් පහත දැක්වේ.

A - විශාල පස් කැට පොඩි කිරීම හා කලවම් කිරීම
B - පස් කැපීම සහ පෙරලීමෙන් විශාල පස් කුට්ටි සෑදීම
C - පැල,පේළි අතර ඇති වල් පැළෑටි තලා පසට යට කිරීම

ඉහත A,B හා C ක්‍රියාකාරකම් ඉටු කරන උපකරණ පිළිවෙලින්,

1. තැටි නගුල, භ්‍රමණ පොරුව, පිජරය.
2. භ්‍රමණ පෝරුව, තැටි නගුල, ජපන් රොටරි විඩරය.
3. කොකු නගුල, පිජරය, භ්‍රමණ පෝරුව.
4. තැටි පෝරුව, තැටි නගුල, පිජරය.
5. පිජරය,කොකු නගුල,ජපන් රොටරි විඩරය.

දෙවන පිටුව බලන්න

CamScanner

5) ස්භාවිකව ස්වපරාගනය සිදුවන බෝග පමණක් අඩංගු වනුයේ ,
1. බඩ ඉරිඟු , සෝගම් , කුරක්කන්
2. දඹල, කව්පි,කඩල
3. වැටකොළු, රාබු,ගෝවා
4. අමු මිරිස්,වම්බටු,තම්පලා
5. සූරියකාන්ත,අලිපේර,තක්කාලි

6) බෝග අස්වනු වල පරිණත බව නිරීක්ෂණය කිරීමට භාවිතා කල හැකි කායික විද්‍යාත්මක සාධකයක් වන්නේ
1. තෙල් ප්‍රමාණයයි.
2. අම්ල ප්‍රමාණයයි.
3. විශිෂ්ට ගුරුත්වයයි.
4. නිෂ්පාදනය වන එතිලින් ප්‍රමාණයයි.
5. පුෂ්පහට ගැනීමේ දින ගණනයි.

7) ආහාරයේ ප්‍රෝටීන ප්‍රමාණාත්මකව හා ගුණාත්මකව ඌන වීම හේතුවෙන් හට ගන්නා රෝගයක් වනුයේ ,
1. මැරස්මස්
2. ක්වොශියෝකොර්
3. ගල ගණ්ඩය
4. රක්තහීනතාවය
5. අධි රුධිර පීඩනය

8) ගව දෙනුන් පාලනයේදී යොදා ගන්නා උපකරණයක් පහත දැක්වේ.එම උපකරණය විය හැක්කේ,

1. කෘත්‍රිම සිංචන තුවක්කුව.
2. පෙරහන් කෝප්පය.
3. කිරි දෝවන යන්ත්‍රය.
4. කෘත්‍රිම යෝනිය.
5. ට්‍රොකා කැනියුලා උපකරණය.

9) ජලය තිරසර ප්‍රයෝජනයට ගැනීම හා සංවර්ධනය වන රටවල ඉඩම් සම්පත ඵලදායිව ප්‍රයෝජනයට ගැනීම ඉලක්ක කරගත් ලාභ නොලබන අන්තර්ජාතික ආයතනයකි.
1. ආහාර හා කෘෂිකර්ම සංවිධානය.
2. අන්තර් ජාතික ජල කළමනාකරණ ආයතනය.
3. ලෝක සෞඛ්‍ය සංවිධානය.
4. එක්සත් ජාතීන්ගේ සංවිධානය.
5. අන්තර් ජාතික සහල් පර්යේෂණ ආයතනය.

10) එක්තරා ප්‍රදේශයකට දිනක් තුල ලැබුණු වර්ෂාපතනය 70 mm ක් ලෙස සටහන් විය.එම පාඨාංකය ලබා ගැනීමට භාවිත කල වර්ෂාමානයේ විශ්කම්භය 10cm නම් එදින වර්ෂාමානයේ එකතු වූ ජල පරිමාව වන්නේ,
1. 220 cm^3
2. 440 cm^3
3. 550 cm^3
4. 55 cm^3
5. 420 cm^3

11) විද්‍යාගාර තත්ව යටතේ පාංශු තෙතමනය මැනීම සඳහා වඩාත් සුදුසු ක්‍රමය වන්නේ,
1. පිපෙට්ටු ක්‍රමය.
2. ක්ෂේත්‍ර ආතතිමාන ක්‍රමය.
3. භාරමිතික ක්‍රමය.
4. ද්‍රවමාන ක්‍රමය.
5. ජිප්සම් කුට්ටි ක්‍රමය.

12) ගොවියකු විසින් පහතරට වියළි කලාපයේ අක්කර දෙකක පමණ වූ භූමියක සමචතුරස්‍රාකාර ක්‍රමයට සිටුවා ඇති කර්තකොලම්බන් අඹ වගාවක් සඳහා ක්ෂේත්‍රය අසල ඇති වාරි ඇලකින් ජලය ලබා ගැනීමට සැලසුම් කර ඇත.එම ක්ෂේත්‍රයට වඩාත් සුදුසු ජල සම්පාදන ක්‍රමය වන්නේ,
1. ඇලි වැටි ජල සම්පාදනයයි.
2. බේසම් ජල සම්පාදනයයි.
3. විසිරුම් ජල සම්පාදනයයි.
4. පිටාර ජල සම්පාදනයයි.
5. බිංදු ජල සම්පාදනයයි.

අ.පො.ස උසස් පෙළ සියලුම විෂයන්ට අදාල ප්‍රශ්න පත්‍ර/පිළිතුරු පත්‍ර/සටහන් ලබා ගැනීමට Past Papers Wiki වෙත පිවිසෙන්න
CamScanner

Past Papers Wiki

13) ද්විශීය ද්විබීජ පත්‍ර බීජයක කොටස් සම්බන්ධව ප්‍රකාශ කිහිපයක් පහත දැක්වේ.

A. බීජ ලපය - කරල තුල වූ නටුවට බීජය සම්බන්ධ වන ස්ථානය වන අතර බීජ ප්‍රරෝපණයෙදී ප්‍රථමයෙන් නිපාතය මගින් ජලය ඇතුළු වේ.

B. බීජ අනුද්වාරය - බීජය වර්ධනය වන අවස්ථාවේදී බීජය මාතෘ ශාකයෙන් පෝෂණය ලබා ගැනීම සිදු කරයි.

C. බීජෝපරිය - බීජ ප්‍රරෝහණයේදී ශාකයේ අග්‍රස්ථය ලෙස වර්ධනය වේ.

ඉහත ප්‍රකාශ අතුරින් නිවැරදි ප්‍රකාශය වන්නේ,

1. A පමණි. 2. B පමණි. 3. C පමණි.
4. A හා C පමණි. 5. B හා C පමණි.

14) වර්ධක ප්‍රචාරණ ක්‍රමයක් ලෙස බද්ධ කිරීමෙන් නව ශාක ලබා ගනියි.පහත රූප සටහනින් නිරූපණය කර ඇති බද්ධ ආකාරය වනුයේ,

1. පැළි බද්ධය
2. H බද්ධය
3. T බද්ධය
4. පැලුම් රිකිලි බද්ධය
5. කිරුළු බද්ධය

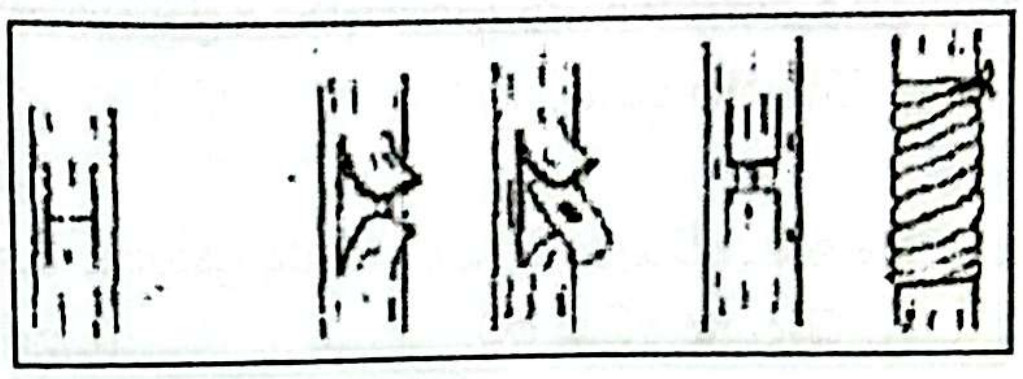

15) මල් වල රතු (R) පැහැය කහ (r) පැහැයට ප්‍රමුඛ වේ.උස (T)ශාක මිටි (t) ශාකයට ප්‍රමුඛ වේ. නුමුහුම් උස රතු පැහැති මල් දරණ ශාකයක පරාග නුමුහුම් උස කහ පැහැති මල් දරන ශාකයක කලංකය මත පතිත වූ විට ලැබෙන දුහිතෘ ශාක වල ජන්මාණු දර්ශය වන්නේ,

1. TtRr 2. ttRr 3. TTRR 4. TTRr 5. TTrr

16) බෝග වගාවේදී යොදා ගන්නා ආරක්ෂිත ගෘහ පිලිබදව වඩාත් නිවැරදි ප්‍රකාශය වනුයේ,

1. පොලිතින් ගෘහ ජල සංරක්ෂණය සඳහා වඩාත් වැදගත් වේ.
2. පොලිතින් ගෘහ සැකසීමට හරිතාගාර වලට වඩා වියදමක් දැරිය යුතුය.
3. ලණු ගෘහ සුදුසු වන්නේ පත්‍රමය එළවළු සඳහා පමණි.
4. පොලිතින් ගෘහ සුදුසු වන්නේ වර්ධක ප්‍රචාරණ බෝග සඳහා පමණි.
5. ශ්‍රී ලංකාවේ වර්තමානයේ වඩාත් ප්‍රචලිත ආරක්ෂිත ගෘහ ආකාරය වන්නේ හරිතාගාර වේ.

17) පහත දැක්වෙන්නේ බෝග වගාවන්ට හානි කරන පලිබෝධයකි.පහත පලිබෝධකයා විය හැක්කේ,



1. වී වගාවේ මුල් කා දමන බිම් ඌරකි.
2. වට්ටක්කා බෝගයේ පත්‍ර කා දමන එපිලැක්කාය.
3. මිරිස් බෝගයේ කොළ කොඩ වීමට හේතු වන මයිටාවකි.
4. ගොයම් බෝගයේ සුරා යුෂ උරා බොන ගොයම් පැල මැක්කා ය.
5. අන්නාසි බෝගයේ මතුපිට යුෂ උරා බොන අන්නාසි පිටි මකුණාය.

18) පලිබෝධ පාලනය සඳහා යොදා ගනු ලබන "එන්ඩොසල්ෆාන්" රසායනික ද්‍රව්‍ය පිලිබද පහත වගන්ති සලකන්න.

A. ඔගැනෝක්ලෝරීන් රසායනික කාණ්ඩයට අයත් කෘමිනාශකයකි.

B. අහිතකර අවශේෂ පරිසරයේ නොරැඳෙන බැවින් දිගකල් නොපවතින කෘමිනාශකයකි.

C. ජලයේ දිය නොවන සංඝටක කාබනික ද්‍රාවයක දියකර සාදාගත් තෛලෝද ආකාර කෘමිනාශකයකි.

ඉහත ප්‍රකාශ අතුරින් සත්‍ය ප්‍රකාශය වන්නේ ,

1. A පමණි 2. B පමණි. 3. C පමණි. 4. A හා B 5. A හා C

CamScanner

19) ක්ෂුද්‍ර ජීවීන් මගින් ආහාරයක ඇති ප්‍රෝටීන කුමන ක්‍රියාවලියකට ලක් වීමෙන් නරක් වේද?

1. පූතිභවනය 2.පැසීම 3.කැරමලීකරණය 4.මුඩු වීම 5.මෙලාඩ් ප්‍රති යාව

20) භාණ්ඩයක ප්‍රවාහනයට හා පරිහරණයට පහසු වන සේ කරනු ලබන ඇසුරුම වන්නේ,

1. ප්‍රාථමික ඇසුරුම 2. පාරිභෝගික ඇසුරුම 3. ප්‍රවාහන ඇසුරුම
4. ද්විතියික ඇසුරුම 5.රික්තක ඇසුරුම

21) කුකුල් පාලනයේ දී යොදා ගන්නා බිත්තර රක්කවන සම්බන්ධව නිවැරදි වගන්තිය වනුයේ,

1. බිත්තර රක්කවනයක උෂ්ණත්වය වැඩි වුව හොත් පැටවකු පිටතට ඒමට ගතවන කාලය වැඩි වේ.
2. බිත්තර රක්කවනයක සාමාන්‍යයෙන් උෂ්ණත්වය කුකුළු වර්ගය මත වෙනස් වේ.
3. බිත්තර රක්ක වීම හා පැටවුන් ඉපදීම එකම කොටසේ සිදුවන විට එය තුල උෂ්ණත්වය 37.8 C^0 විය යුතුය.
4. බිත්තර රක්ක වීම ආරම්භ කල දින සිට දිනපතා බිත්තර හැරවීම සිදු කල යුතු වේ.
5. බිත්තර රක්කවනයක ආර්ද්‍රතාවය පලමු සතියේ සිට ක්‍රමයෙන් අඩු කල යුතු අතර 2/3 පැටවුන් එලියට එන විට එය 75% විය යුතුය.

22) සංරක්ෂක ගොවිතැන පිලිබද නිවැරදි ප්‍රකාශය වන්නේ,

1. පාංශු ඛාදනය අධික වේ.
2. වියදම අධික යෙදවුම් භාවිතය නිසා නිෂ්පාදන වියදම වැඩිය.
3. ශුන්‍ය හා අවම බිම් සැකසීමේ ක්‍රම භාවිතයේදී වල්නාශක භාවිතය නිසා පරිසර දූෂණය අධික වේ.
4. ජෛව විවිධත්වය අඩු වේ.
5. ඒක බෝග වගාව යොදා ගනියි.

23) පහත දී ඇති වගන්ති අතුරින් සත්‍ය ප්‍රකාශය / ප්‍රකාශ වන්නේ,

A. ගොවිපලක අධික ශබ්ද තතත්ව යටතේ වැඩ කිරීමෙන් හෘදස්පන්දන වේගය වැඩි විය හැක.
B. අභිස්පන්දනය යනු අධික ශබ්දය නිසා ඇති විය හැකි ආපදාවකි.
C. අධික කම්පන තත්ව නිසා අඟිලි හිරිවැටීමේ තත්ව ඇති විය හැක.
D. විජලනය නිසා නිල වර්ණතාවය ඇති විය හැක.

1. A හා B පමණි 2. B හා C පමණි. 3. C හා D පමණි
4. A හා D පමණි. 5. සියල්ලම ය.

24) පලිබෝධ වල ගහන විචලතා දැක්වෙන කල්පිත ප්‍රස්ථාරය පහත දැක්වේ.

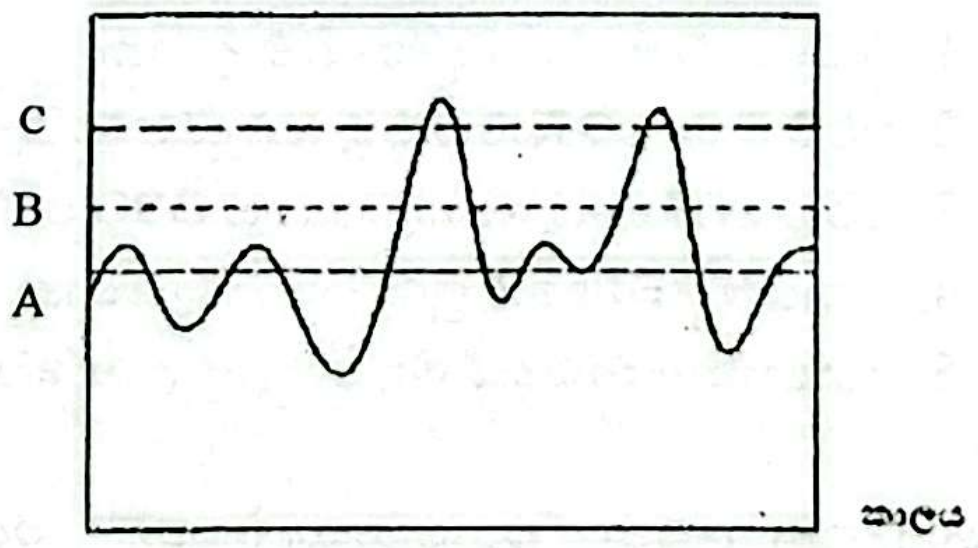

මෙහි C කලාපයෙන් ඔබබට පලිබෝධ ගහණයක් ඇති විමට හේතුවක් විය හැක්කේ,

1. නිර්දේශිත පොහොර මිශ්‍රණ භාවිතය.
2. බෝග අතර නියමිත පරතරය පවත්වා ගැනීම.
3. ක්ෂේත්‍රයේ එක් බෝගයක් පමණක් වගා කිරීම.
4. පිරිසිදු රෝපණ ද්‍රව්‍ය භාවිතය.
5. ක්ෂේත්‍රයේ ජලවහන තත්ව දියුණු කිරීම.

අ.පො.ස උසස් පෙළ සියලුම විෂයන්ට අදාල ප්‍රශ්න පත්‍ර/පිළිතුරු පත්‍ර/සටහන් ලබා ගැනීමට Past Papers Wiki වෙත පිවිසෙන්න
CamScanner

25) මෝසම් වර්ෂා ජලය භාවිතයෙන් කරනු ලබන ලබන වගාවන් හි අස්වැන්න වියළි කාලයේ වාරි ජලයෙන් ලබා ගන්නා අස්වැන්නට වඩා අඩුය.මෙයට ප්‍රධාන හේතුව වන්නේ,
මෝසම් කාලයේ දී,
1. පවතින අඩු උෂ්ණත්වය නිසා ප්‍රභාසංස්ලේෂණ වේගය අඩු වී අස්වැන්න අඩු වීමයි.
2. වලාකුළු වලින් අහස වැසීම නිසා ලැබෙන ආලෝක තීව්‍රතාවය අඩු වීමෙන් ප්‍රභාසංස්ලේෂණ වේගය අඩු වීමයි.
3. පාංශු ඛාදනය නිසා පසේ සාරවත්භාවය අඩු වීමයි.
4. පවතින අධික ආර්ද්‍රතාවය නිසා පූටිකා වැසී ප්‍රභාසංස්ලේෂණයට බලපෑමයි.
5. පවතින අධික වර්ෂාපතනයෙන් ශාක පත්‍ර වලට හානි වීම නිසා ප්‍රභාසංස්ලේෂණ අඩු වීමයි.

26) පාංශු පැතිකඩක් සම්බන්ධව ප්‍රකාශ කිහිපයක් පහත දැක්වේ.
A. පාංශු පැතිකඩ සංවර්ධනයෙන් අවුරුදු 100කට පමණ පසු වෘක්ෂලතා රෙගොලිතය මත වැඩේ.
B. A කලාපය තුල කාබනික ද්‍රව්‍ය අඩුවෙන් පවතින අතර B කලාපයේ බහුලව දක්නට ලැබේ.
C. පාංශු පැතිකඩ සංවර්ධනයෙන් වසර 1000ක් පමණ ගත වූ විට යකඩ ඔක්සයිඩ හා සිලිකේට් මැටි ඛනිජ නිෂ්පාදනය වී පාංශු පැතිකඩේ පහලට ගමන් කර A කලාපයෙහි රතු වර්ණකයක් ඇති වේ.
D. පැතිකඩ සංවර්ධනයෙන් වසර 10000 ට පමණ පසු B කලාපයට ඉහලින් E කලාපය ඇති වේ.

1. A හා B පමණි. 2. A හා C පමණි 3. A හා D පමණි.
4. C හා D පමණි. 5. A, B හා C පමණි.

27) ඉහල කිරි නිෂ්පාදනයක් ලබා ගත හැකි ෆ්‍රිෂියන් ගව දෙනුන් පාලනයට වඩාත් යෝග්‍ය සත්වපාලන කලාපය වනුයේ,
1. උඩරට කලාපය 2. පහතරට තෙත් කලාපය 3. මැදරට කලාපය
4. පොල් ත්‍රිකෝණය 5. වියළි කලාපය

28)

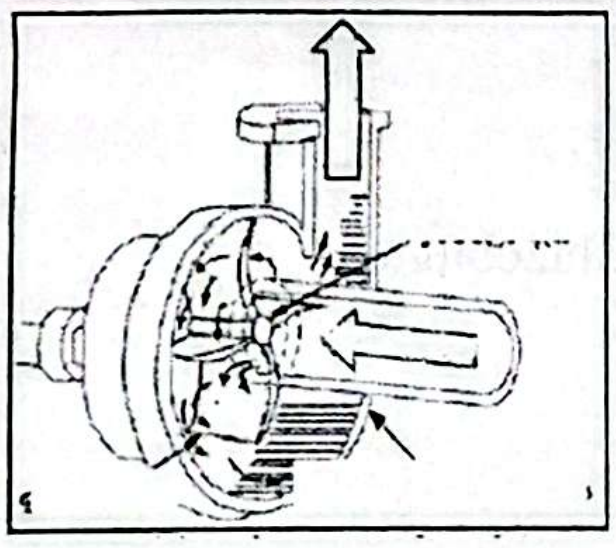

ඉහත රූපසටහනින් දැක්වෙන ජල පොම්පය පිලිබද නිවැරදි වර්ණය වන්නේ,
1. පොම්පය සඳහා වන මූලික වියදම අධිකය
2. මඩ හා වැලි සහිත ජලය පොම්ප කල හැක.
3. විසර්ජන ජල පහර අඛණ්ඩ නොවේ.
4. ස්ථානගත කිරීමට විශාල ඉඩක් අවශ්‍ය වේ.
5. ක්‍රියාත්මක කිරීමට විදුලිය හෝ ඉන්ධන අවශ්‍ය නොවේ.

29) දියගත වගාව (Hydrophonics) යනු ,
1. පාවෙන ජලජ ශාක වගා කරන ක්‍රමයකි.
2. නිමග්න ජලජ ශාක වගා කරන ක්‍රමයකි.
3. ජලය තුල ශාක වගා කරන ක්‍රමයකි.
4. මත්ස්‍යයන්ට ආහාර ලෙස ශාක වගා කරන ක්‍රමයකි.
5. පස වෙනුවට ජලය වගා මාධ්‍ය ලෙස භාවිත කර ශාක වගා කරන ක්‍රමයකි.

30) පහත දැක්වෙන්නේ කෘමියෙකුගේ දර්ශීය මුඛ උපාංග නිරූපණය කරන රූප සටහනකි. මෙහි A හා B කොටසේ පිළිවෙලින් විය හැක්කේ,

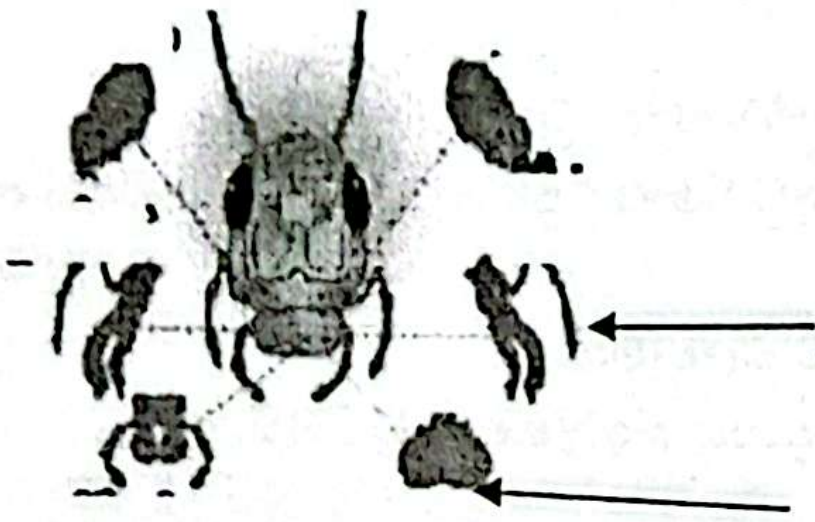

1. පූර්වෝෂ්ඨය හා අධෝහනු වේ.
2. හනුක උපාංග හා අධරය වේ.
3. අධෝහනු හා හනුක උපාංග වේ.
4. අධරය හා පූර්වෝෂ්ඨය වේ.
5. අධෝහනු හා අධරය වේ.

31) පහත දැක්වෙන්නේ බීජ සාම්පලයක විද්‍යාගාර පරීක්ෂණයකින් ලබා ගත් පරීක්ෂණ දත්ත කිහිපයකි.

A. තෙතමනය ප්‍රතිශතය - 14%
B. ප්‍රරෝහණ ප්‍රතිශතය - 80%
C. ටෙට්‍රාසෝලියම් පරීක්ෂාව - 95%
D. කැඩුණු හා යාන්ත්‍රික හානි වූ බීජ - 100/500g

ඉහත ලක්ෂණ අතුරින් සිටුවීමට වඩාත් සුදුසු බීජ වල අඩංගු විය යුතු ලක්ෂණ වනුයේ,

1. A හා B පමණි. 2. A හා C පමණි. 3. B හා C පමණි.
4. C හා D පමණි. 5. A , B හා C පමණි.

32) ජෛව පොහොර ආකාරයක් සම්බන්ධව ප්‍රකාශන කිහිපයක් පහත දැක්වේ.

A. පාංශු බැක්ටීරියා ආකාරයකි.
B. වායුගෝලීය නයිට්‍රජන් ශාකයට ලබා ගත හැකි නයිට්‍රජන් ලෙස පසට එකතු කිරයි.
C. Poaceae කුලයේ ශාක සමග සහජීවීව වාසය කරයි.

ඉහත ජෛව පොහොර ආකාරය විය හැක්කේ,

1. Azotobacter 2. Clostridum 3. Rhizobium
4. Azospirillum 5.Psudomonas

33) මුල් කිරි සම්බන්ධව නිවැරදි නොවන්නේ ,

1. මුල් කිරි වල සාමාන්‍ය කිරි වලට වඩා ප්‍රෝටීන ප්‍රමාණය වැඩිය.
2. පැටවුන් ඉපදී දින 3ක් අනිවාර්යෙන් මුල් කිරි ලබා දිය යුතුය.
3.මුල් කිරි වල මේද ගෝලිකා විශාල බැවින් එය පහසුවෙන් ජීරණය කල හැකිය.
4. පැටවුන් මුල් වරට මල පහ කිරීම සඳහා මුල් කිරි උපකාරී වේ.
5.ජීරණය කිරීමකින් තොරව අවශෝෂණය කල හැකි පෝෂක මුල් කිරි වල අඩංගු වේ.

34) පසෙහි ඇති ජලයෙන් උදුනේ වියලා ගැනීමෙන් පමණක් පසෙන් ඉවත් කල හැකි ජලයේ Pf පරාසය වනුයේ,

1.0 – 2.5 2. 2.5 – 4.2 3. 2.5 – 4.2 4. 4.5 – 7 5. 4.2 - 6.0

35) පාංශු ක්ෂාරියතාවය ඉවත් කිරීමට පසට යොදන ද්‍රව්‍යයක් වනුයේ,

1. $CaCO_3$ 2. $CaSO_4$ 3. $Ca(OH)_2$ 4. CaO 5.$CaCO_3MgCO_3$

36) කොම්පෝස්ට් සෑදීමේ යොදා ගන්නා අමුද්‍රව්‍ය වල ප්‍රශස්ථ C/N අනුපාතය වනුයේ,

1. 15:1 2. 25:1 3. 35:1 4. 45:1 5.55:1

37) බෝග වගාවේදී නයිට්‍රජන් ඌනතා ලක්ෂණ වලට සමාන ඌනතා ලක්ෂණ බෝග වල පෙන්නුම් කරන්නේ,

1. යකඩ හිඟ වීමෙනි. 2. සල්ෆර් හිඟ වීමෙනි.
3. මැග්නීසියම් හිඟ වීමෙනි. 4. පොටෑසියම් හිඟ වීමෙනි.
5. පොස්පරස් හිඟ වීමෙනි.

අ.පො.ස උසස් පෙළ සියලුම විෂයන්ට අදාල ප්‍රශ්න පත්‍ර/පිළිතුරු පත්‍ර/සටහන් ලබා ගැනීමට Past Papers Wiki වෙත පිවිසෙන්න
CamScanner

38) ශාක ප්‍රභාසංස්ලේෂණ සීඝ්‍රතාව හා වායුගෝලය CO_2 සාන්ද්‍රණය අතර සම්බන්ධතාව දැක්වෙන ප්‍රස්ථාරය වනුයේ,

1. 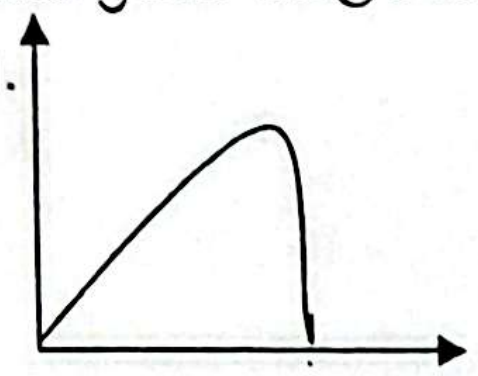

2. 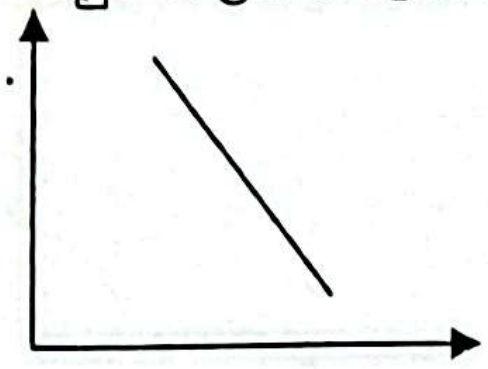

3. 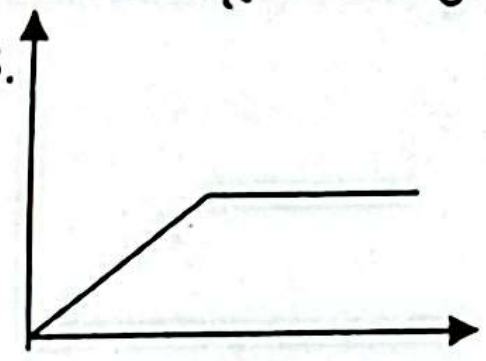

4. 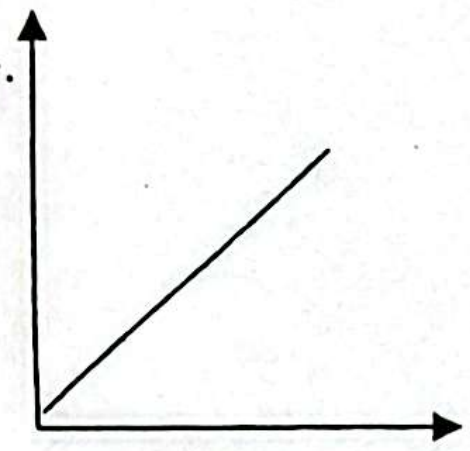

5. 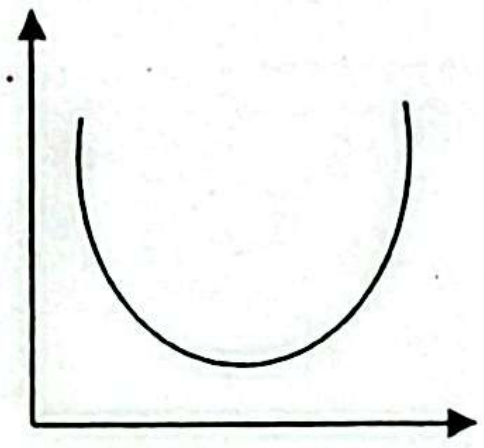

39) වර්ෂා පෝෂිත ගොවිතැනේ පියවර කිහිපයක් පහත දැක්වේ.

A. වැට සැකසීම
B. වනාන්තර එළි කිරීම
C. බිම් සැකසීම
D. පිළිස්සීම
E. බීජ සිටුවීම

මෙහි නිවැරදි පියවර අනුපිළිවෙල වනුයේ,

1. ABCDE
2. BDACE
3. DBACE
4. BADCE
5. BCDAE

40) වගා ක්ෂේත්‍රය තුල හෝ වගා ක්ෂේත්‍රය අතර විචලතාව නිරීක්ෂණය කරමින් හා අගයමින් එම තත්ව වලට ප්‍රතිචාර දැක්වීම සඳහා තොරතුරු තාක්ෂණය යොදා ගනිමින් සම්පත් කාර්යක්ෂම භාවිත කරමින් සිදු කරනු ලබන ගොවිපල කළමණාකරණ සංකල්පය වනුයේ,

1. සංරක්ෂණ ගොවිතැනය.
2. යථාතත්‍ය ගොවිතැනය.
3. සමෝධානික ගොවිතැනය.
4. කාබනික ගොවිතැනය.
5. තිරසර ගොවිතැනය.

41) ගව දෙනෙකුගේ කිරි අස්වැන්න පිළිබඳ ප්‍රකාශ කිහිපයක් පහත දැක්වේ.

A. කිරි දෙවීමේදී විනාඩි 8 – 10 අතර කාලයේදී ඉක්මනින් කිරි දොවා ගැනීමෙන් කිරි අස්වැන්න වැඩි වේ.
B. කිරි දෙවුම් වාර දෙකක් අතර කාලය පැය 08 කට වඩා වැඩි වීමෙන් කිරි අස්වැන්න අඩු වේ.
C. ක්ෂීරණයේ මුල් සති 6 – 8 දී කිරි නිෂ්පාදනය අඩු අතර එය පසුව ක්‍රමයෙන් වැඩි වේ.

ඉහත ප්‍රකාශ අතුරින් නිවැරදි ප්‍රකාශය / ප්‍රකාශ වන්නේ,

1. A පමණි.
2. B පමණි.
3. C පමණි
4. A හා B පමණි.
5. B හා C පමණි.

42) දේශීය ගවයන්ගේ කිරි නිෂ්පාදනය ඉතා අඩුය.සත්ව අභිජනන ක්‍රමවේද භාවිතයෙන් කිරි නිෂ්පාදන හැකියාව වැඩි දියුණු කිරීමට බලාපොරොත්තුවෙන් සිදු කල හැකි වඩාත් සාර්ථක අභිජනන ක්‍රමය වනුයේ,

1. යුරෝපීය ගව වර්ගයක් සමග දෙමුහුම් කිරීම ය.
2. ඉන්දිය ගව වර්ගයක් සමග දෙමුහුම් කිරීම ය.
3. ඉහල නිෂ්පාදනයක් පෙන්වන දේශීය ගවයන් සමග මුහුම් කිරීම ය.
4. පලමුව යුරෝපීය ගව වර්ගයක් සමග දෙමුහුම් කර පසුව ඉන්දිය වර්ගයක් සමග මුහුම් කිරීම ය.
5. පලමුව ඉන්දිය ගව වර්ගයක් සමග දෙමුහුන් කර පසුව යුරෝපීය ගව වර්ගයක් සමග මුහුම් කිරීම ය.

43) සත්ව පාලනයේදී යොදා ගන්නා තාප කලාප ප්‍රස්ථාරය පහත දැක්වේ.

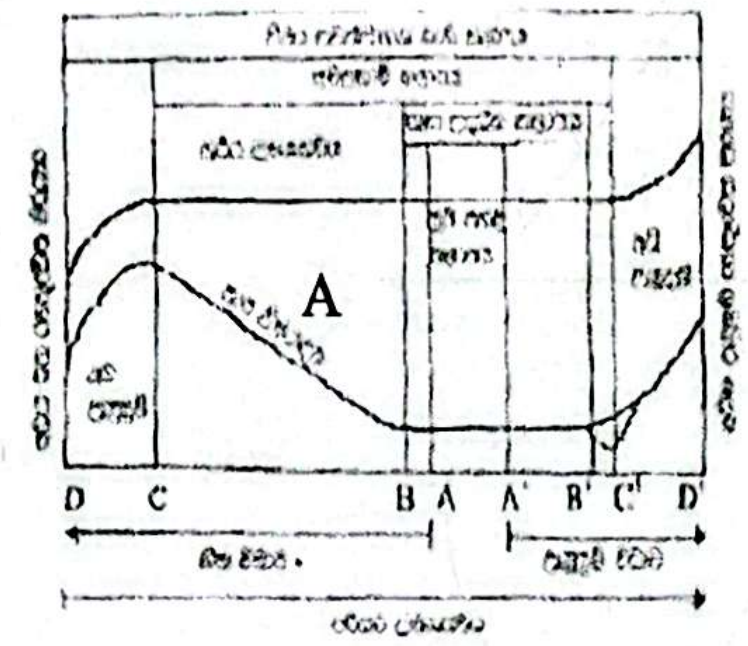

ගොවිපලක බිත්තර දමන කිකිලියක් ඉහත A ලෙස දක්වා ඇති කලාපය තුලදී පෙන්විය හැකි හැසිරීමේ ප්‍රතිචාරයක් විය විය හැක්කේ,

1.ජල ආගනුව වැඩි වීමයි.
2. සතුන් කණ්ඩායම් ලෙස ගොනු වී සිටීමයි.
3. දහඩිය දැමීමයි.
4. එකතැන රැදී සිටීමයි.
5. හති දැමීමයි.

44) ශාකයක වර්ධනය නිශේධනය කිරිමට භාවිත කරන ශාක හෝර්මෝනය වන්නේ,

1. ගිබරලීන්ය 2. ඔක්සීන් ය 3.සයිටොකයිනීන්ය
4. එතිලීන් ය 5. ඇබ්සසික් අම්ලය

45) නිෂ්පාදන සාධකයක ලක්ෂණ කිහිපයකි.

A. ගලා යන සම්පතකි.
B. සීමා සහිත සම්පතකි.
C. භෞතික වශයෙන් සංචරණය කල නොහැක.
D. නිෂ්පාදන ක්‍රියාවලියේ පුරෝගාමියා වේ.

“භූමිය ” යන නිෂ්පාදන සාධකයේ ලක්ෂණයක් වනුයේ,

1. A හා B පමණි. 2.B හා C පමණි. 3. C හා D පමණි. 4.A හා D පමණි 5.B හා D පමණි.

46)

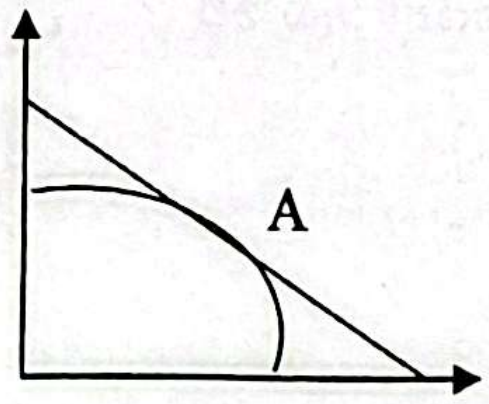

A ලක්ෂය මගින් පෙන්නුම් කරනුයේ කුමන සම්බන්ධතාවයේ සමතුලිත අවස්ථාවද?

1. යෙදවුම් - යෙදවුම් සම්බන්ධතාව
2. යෙදවුම් - මිල සම්බන්ධතාව
3. යෙදවුම් - නිමැවුම් සම්බන්ධතාව
4. ආදායම් - වියදම් සම්බන්ධතාව
5. නිමැවුම් - නිමැවුම් සම්බන්ධතාව

අ.පො.ස උසස් පෙළ සියලුම විෂයන්ට අදාල ප්‍රශ්න පත්‍ර/පිළිතුරු පත්‍ර/සටහන් ලබා ගැනීමට Past Papers Wiki වෙත පිවිසෙන්න
CamScanner

47) වෙළඳපොලට කුකුල්මස් සැපයුම වැඩි වීමට පහත කවර සාධකය නිසා සිදු වන්නේද?
1. අධික උෂ්ණත්වය පැවතීම
2. මාළු වල මිල අඩු වීම
3. කුකුල් ආහාර වල මිල අඩු වීම.
4. කුකුලන් අතර පුල්ලෝරම් රෝගය පැතිරීම
5. කුකුල් මස් පිලිබඳව පාරිභොගිකයා අතර මිත්‍යා මත පැතිර යාම.

48) පූර්ණ තරගකාරි වෙළඳපොලක බිත්තර ඉල්ලුම හා සැපයුම පහත ශ්‍රිතයෙන් දැක්වේ.

$$Qs = 50 + 5p$$
$$Qd = 3p + 150$$

බිත්තර සඳහා සමතුලිත මිල හා බිත්තර ප්‍රමාණය පිලිවෙලින් දැක්වනුයේ,

1. 70 , 500 2. 50 , 450 3. 50, 300 4. 150 , 60 5. 145,30

49) A වෙළඳපොල අගය දාමයක් පහත දැක්වේ.

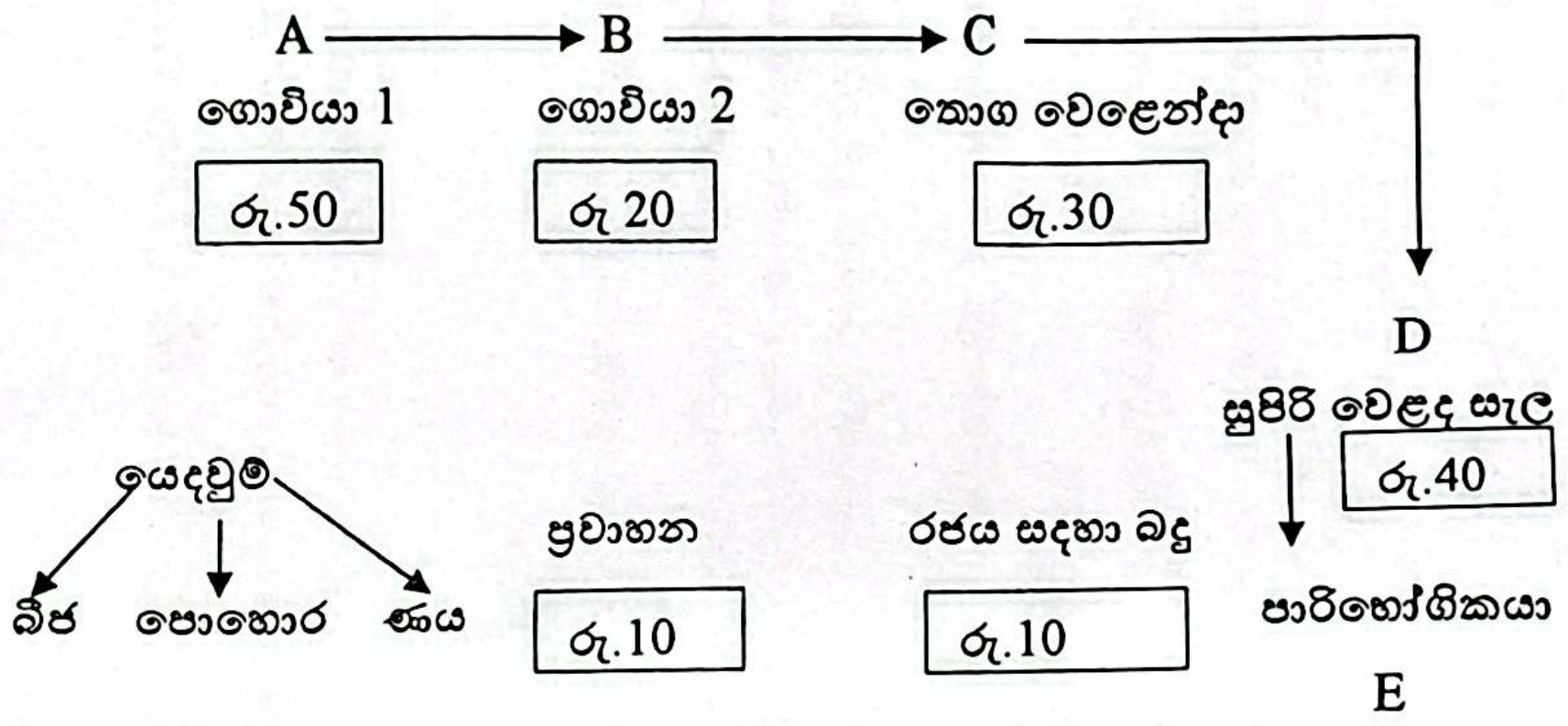

ඉහත අගය දාමයට අනුව පාරිභෝගිකයා භාණ්ඩ සඳහා ගෙවිය යුතු මිල වන්නේ රුපියල්,

1. 80 2. 100 3. 140 4. 160 5. 200

50) ශෂය මාරුව සඳහා සුදුසු බෝග කාණ්ඩ යෙදීමේ අනුපිළිවෙල තෝරන්න.

1. ධාන්‍ය බෝග → අල බෝග → එළවළු බෝග → රනිල බෝග
2. අල බෝග → එළවළු බෝග → රනිල බෝග → ධාන්‍ය බෝග
3. රනිල බෝග → එළවළු බෝග → ධාන්‍ය බෝග → අල බෝග
4. ධාන්‍ය බෝග → රනිල බෝග → අල බෝග → එළවළු බෝග
5. එළවළු බෝග → රනිල බෝග → ධාන්‍ය බෝග → අල බෝග

**

සියලු ම හිමිකම් ඇවිරිණි/ முழுப் பதிப்புரிமையுடையது/ All Rights Reserved

මධ්‍යම පළාත් අධ්‍යාපන දෙපාර්තමේන්තුව
மத்திய மாகாண கல்வித் திணைக்களம்
DEPARTMENT OF EDUCATION CENTRAL PROVINCE

අ.පො.ස (උ.පෙළ) පෙරහුරු පරීක්ෂණය - 2025

කෘෂි විද්‍යාව II	08	S	II	13 ශ්‍රේණිය	පැය තුනයි

උපදෙස්:

* සියලු ම ප්‍රශ්නවලට පිළිතුරු සපයන්න .
* උත්තර පත්‍රයේ නියමිත ස්ථානයේ ඔබේ විභාග අංකය ලියන්න.
* උත්තර පත්‍රයේ දී ඇති උපදෙස් ද සැලකිල්ලෙන් කියවා පිළිපදින්න.

A කොටස - ව්‍යුහගත රචනා

1) A) මානව ජීවිතය පවත්වා ගැනීම සඳහා උපකාරි වන බෝග වගාව , සත්ව පාලනය , ධීවර හා වන සම්පත් ආශ්‍රිත ව්‍යුත්පන්න "කෘෂි නිෂ්පාදන" නම් වේ.

පහත කෘෂි නිෂ්පාදන සඳහා උදාහරණය බැගින් දක්වන්න.

I. ප්‍රධාන ප්‍රාථමික අවධි නිෂ්පාදනය...

II. ප්‍රධාන ද්විතික අවධි නිෂ්පාදනය ....

III. අතුරු නිෂ්පාදන ....

(3X 2 = 6)

B) වර්ෂාපතනය යනු ශ්‍රී ලංකාවේ බෝග වගාව කෙරෙහි බලපාන ප්‍රධානතම දේශගුණික සාධකය වේ.

I. ශ්‍රී ලංකාවට වර්ෂාපතනය ලැබෙන ප්‍රධාන යාන්ත්‍රණ තුන නම් කරන්න.

1 ....

2 ....

3 .... (3X 2 = 6)

II. ශ්‍රී ලංකාවට පහත සඳහන් කාල සීමාවන්හිදී ලැබෙන වර්ෂාපතන ආකාර නම් කරන්න.

a. මැයි සිට සැප්තැම්බර් මාස දක්වා ....

b. ඔක්තොබර් , නොවැම්බර් මාස ....

c. මාර්තු , අප්‍රේල් මාස .... (3X 2 = 6)

C) පසක භෞතික ස්වභාවය විස්තර කරන ලක්ෂණ පාංශු භෞතික ලක්ෂණ ලෙස හඳුන්වයි.

I. පාංශු වයනයේ කෘෂිකාර්මික වැදගත්කම් දෙකක් සඳහන් කරන්න.

1...

2... (2 X3=6)

II. පාංශු දෘශ්‍ය ඝනත්වය බෝග වගාවට හිතකර ලෙස පවත්වා ගැනිම සඳහා ක්ෂේත්‍රයේ සිදු කල හැකි ක්‍රියාකාරකම් දෙකක් සඳහන් කරන්න.

1...

2... (2X3 =6)

දෙවන පිටුව බලන්න

CamScanner

III. පසක දක්නට ලැබෙන " හැඩය අනුව" පාංශු ව්‍යුහ ආකාර හතරක් සඳහන් කරන්න.

1. ....
2. ....
3. ....
4. .... (4X2 = 8)

D) පහත දැක්වෙන්නේ පසක යම් ගැටළුවක් විසඳීම සඳහා සිදුකල ක්‍රියාකාරකමක් අවසානයේ සිදුවන රසායනික ක්‍රියාවලියකි.

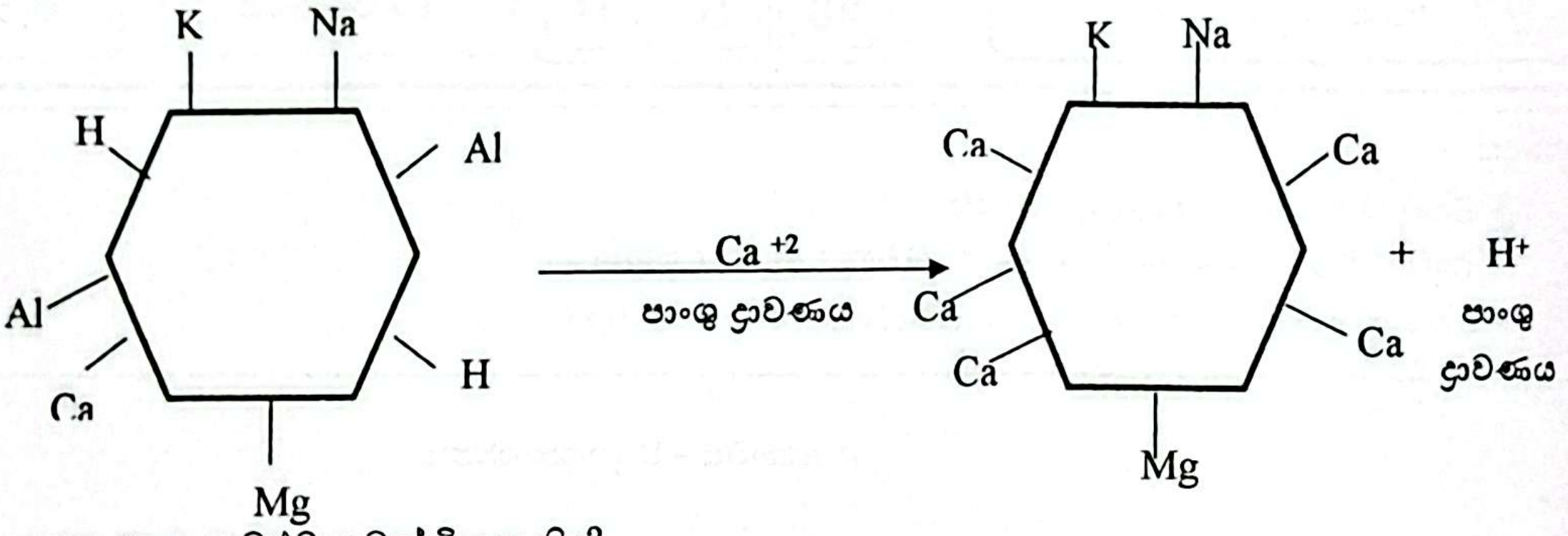

I. ඉහත පාංශු ගැටළුව කුමක් විය හැකිද?

.... (1X 3 = 3)

II. ඒ සඳහා භාවිතා කල රසායන ද්‍රව්‍ය සඳහන් කරන්න

.... (1X 3 = 3)

E) ශාක වලට අවශ්‍ය පෝෂක නිසි පරිදි ලබා දීමට පොහොර භාවිත කරයි.

I. ගොවීන් විසින් බෝග වලට යොදන ප්‍රධාන පොහොර කාණ්ඩ තුන සඳහන් කරන්න.

1. ....
2. ....
3. .... (3X 3 = 9)

II. එම කාණ්ඩ අතුරින් තිරසර කෘෂිකර්මාන්තයේදී භාවිත කල හැකි නව ප්‍රවණතාවයක් ලෙස හඳුන්වා දිය හැකි පොහොර කාණ්ඩය කුමක්ද?;

.... (1X 2 = 2)

III. ඉහත නම් කල පොහොර කාණ්ඩය සඳහා නිදසුනක් සඳහන් කරන්න.

.... (1 X 2 = 2)

IV. අනිසි පොහොර භාවිතය ශ්‍රී ලංකාවේ කෘෂිකර්මාන්තය මුහුණ දී ඇති ප්‍රධාන ගැටලුවකි.එමගින් ඇති වී තිබෙන අහිතකර බලපෑම් දෙකක් සඳහන් කරන්න.

1. ....
2. .... (2X 3 = 6)

F) වී වගාව සඳහා බිම් සැකසීමේ ක්‍රමය "මඩ කිරීම" ලෙස හඳුන්වන අතර මඩ කරගත් බිමක බීජ හෝ පැල සංස්ථාපනය කරයි.

I. වී වගාව සඳහා බිම් සැකසීමේ ප්‍රධාන පියවර සඳහන් කරන්න.

1. ....
2. ....
3. .... (3X3 = 9)

II. වී වගාවේදී පමණක් යොදා ගන්නා තවාන වර්ගය නම් කරන්න.

.... (1X2 = 2)

තෙවන පිටුව බලන්න

අ.පො.ස උසස් පෙළ සියලුම විෂයන්ට අදාල ප්‍රශ්න පත්‍ර/පිළිතුරු පත්‍ර/සටහන් ලබා ගැනීමට Past Papers Wiki වෙත පිවිසෙන්න
CamScanner

Past Papers Wiki

G) අවශ්‍යතා සපුරා ගත හැකි ප්‍රමාණයෙන් ජලය වසර පුරාම හෝ වසරේ යම් කාලයක් තුල ලබා ගත හැකි ජල මූලාශ්‍ර ජල ප්‍රභවයක් ලෙස හඳුන්වයි.

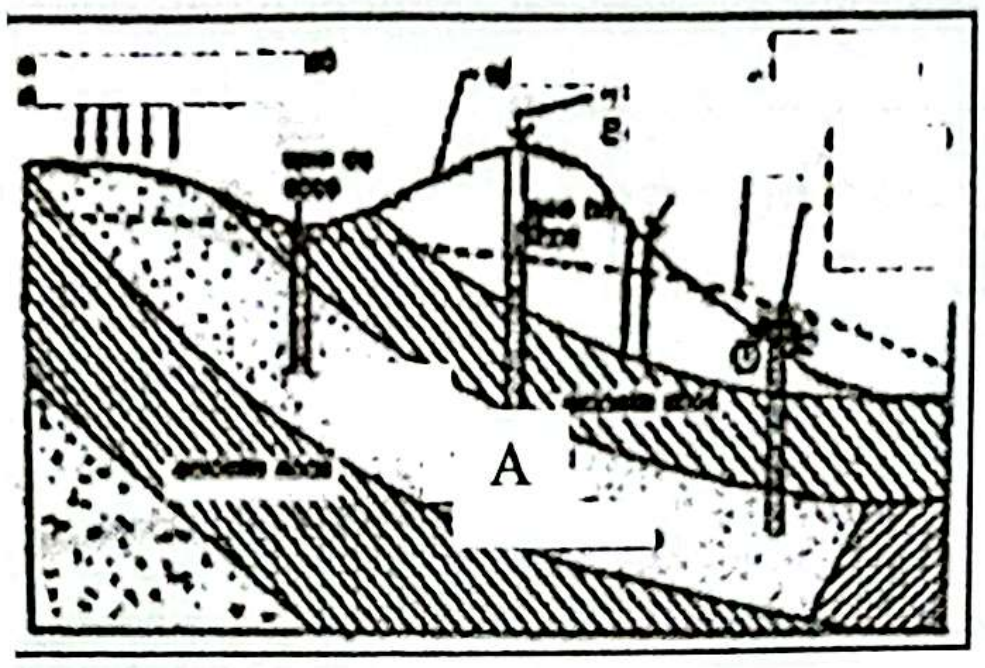

I. ඉහත **A** ජල ප්‍රභවය හඳුනා ගන්න

.... (1X 3 = 3)

II. ඉහත ජල ප්‍රභවය භාවිතා කිරීමේ වාසියක් හා අවාසියක් සඳහන් කරන්න.

a. වාසිය ....

b. අවාසිය.. (2X3 = 6)

III. වගා භූමියක් සඳහා සුදුසු ජල ප්‍රභවයක් තෝරා ගැනීමේදී සලකා බැලිය යුතු ප්‍රධාන සාධක 3ක් සඳහන් කරන්න.

1..

2..

3.. (3X3 = 9)

H) දේශගුණික දත්ත රැස් කර විශ්ලේෂණය කිරීම බෝග වගාවන්ට දේශගුණික විපර්යාස මගින් ඇතිකරන බලපෑම් අවම කරගත හැකිය.

I. දේශගුණික විපර්යාස හේතුවෙන් වර්ෂාපතනය ඇතිකරන බලපෑම අතර ප්‍රධාන විචලතා තත්ව දෙකක් සඳහන් කරන්න.

1..

2.. (2X2 = 4)

II. එම විචලතා හේතුවෙන් බෝග වගාවට ඇති විය හැකි අහිතකර තත්ව දෙකක් සඳහන් කරන්න.

1..

2.. (2X 2 =4)

2) A) වගා බිමෙහි ඇති අතිරික්ත ජලය කෘත්‍රිම ක්‍රම යොදා ගනිමින් පසෙන් ඉවත් කිරීම ජලවහනය කිරීම ලෙස හඳුන්වයි.

I. බෝග වගා කරන භූමියක ජල වහනය දුර්වල වීමට හේතු වන කරුණු දෙකක් සඳහන් කරන්න.

1..

2.. (2X2 = 4)

II. දුර්වල ජලවහන තත්ව යටතේ පසේ නිපදවෙන විෂ වායු වර්ග දෙකක් සඳහන් කරන්න.

1..

2.. (2X2 = 4)

III. දුර්වල ජලවහන තත්ව ඇති භූමියක වගා කරන බෝග වල දැකිය හැකි ලක්ෂණ දෙකක් සඳහන් කරන්න.

1..

2.. (2X2 = 4)

CS CamScanner

B) ශාක වලට ද්‍රව්‍ය අවශෝෂණය වීමට විවිධ යාන්ත්‍රණ උපයෝගි කර ගනියි.

I. ශාක අක්‍රිය ලෙස පෝෂක අවශෝෂණයට භාවිත කරන ක්‍රම දෙකක් නම් කරන්න.

1...

2... (2X 2 = 4)

II. ශාක මුල් මගින් අවශෝෂණය කරන ජලය කඳ තුලින් ඉහලට ගමන් කිරීමට අවශ්‍ය බලය ලබා දෙන යාන්ත්‍රණ දෙකක් නම් කරන්න.

1...

2... (2x2 = 4)

III. ශාක වල ද්‍රව්‍ය පරිවහනය ප්ලෝයම තුලින් සිදුවන බව පරීක්ෂණාත්මකව පෙන්වීම සඳහා භාවිතා කල හැකි ක්‍රම දෙකක් සඳහන් කරන්න.

1...

2... (2X 2 = 4)

C) ශාක ප්‍රචාරණය යනු ලිංගික හා අලිංගික ක්‍රම මගින් නව ශාක බිහි කිරීමේ ක්‍රියාවලියයි.

I. පහත බෝග සඳහා වඩාත් සුදුසු වර්ධක ප්‍රචාරණ ක්‍රමය සඳහන් කරන්න.

a. ටියුලිප් ....

b. රෝස ....

c. සමන්පිච්ච ....

d. රඹුටන් .... (4X3 =12)

II. දඬු කැබලි මගින් සිදුකරන ශාක ප්‍රචාරණයේදී දඬු කැබලි මුල් ඇද්දවීම කෙරෙහි බලපාන අභ්‍යන්තර හා බාහිර සාධක දෙක බැගින් සඳහන් කරන්න.

a. අභ්‍යන්තර සාධක

1...

2...

b. බාහිර සාධක

1...

2...

(4X3 = 12)

D) බද්ධ කිරීම මගින් ශාක ප්‍රචාරණයේදී බහුලව යොදා ගන්නා පැලැස්තර බද්ධයේ පියවර නම් කල රූප සටහනකින් ඇඳ දක්වන්න.

(1X5 = 5)

E) බීජ මගින් ශාක ප්‍රචාරණයේ නිරෝගී බීජ තෝරා ගැනීම තුලින් උසස් අස්වනු ලබා ගත හැකිය.

I සහතික කල බීජ නිෂ්පාදන වැඩ පිලිවෙලෙහි පහත බීජ කාණ්ඩ වල නිර්දේශිත ලේබලයේ වර්ණය සඳහන් කරන්න.

a. අභිජනන බීජ...

b. අත්තිවාරම් බීජ...

c. ලියාපදංචි බීජ...

d. සහතික කල බීජ... (4X3 = 12)

අ.පො.ස උසස් පෙළ සියලුම විෂයන්ට අදාල ප්‍රශ්න පත්‍ර/පිළිතුරු පත්‍ර/සටහන් ලබා ගැනීමට Past Papers Wiki වෙත පිවිසෙන්න
CamScanner

II. පහත බීජ සිටුවීමට පෙර සුප්තතාවය ඉවත් කිරීමේ ප්‍රතිකාර සිදු කරයි.එම බීජ සුප්ත වීමට හේතුව සඳහන් කරන්න.

a. සියඹලා...

b. තේක්ක...

c. තත්කාලි... (3X3 = 9)

F) පටක රෝපණය විද්‍යාගාරයක් තුල ඇති පහත උපකරණ හඳුනා ගන්න.



i...................................... ii...................................... (2X3 = 6)

G) ශාක වල වරණීය අභිජනනයේදී සිදු කරනු ලබන්නේ, ප්‍රයෝජනවත් ලක්ෂණ සහිත ශාක දෙමාපියන් වශයෙන් තෝරා වෙන් කර ගෙන ඔවුන් නිතර සහාභිජනනයට අනුබල දී දෙමුහුම් අභිජනනය වැලැක්වීමයි.

I. ශාක වල වරණය සිදු කරන ප්‍රධාන ක්‍රම දෙක සඳහන් කරන්න.

1...

2... (2X3 = 6)

II. ශාක අභිජනනයේදී විකෘති ඇති කරන ක්‍රම දෙක සඳහන් කරන්න.

1...

2... (2X3 = 6)

H) කෘෂිකර්මාන්තයේදී මුහුණ දීමට සිදුවන ආපදාවන් අවම කිරිම ඉතා වැදගත් වේ.

I. කෘෂි ක්ෂේත්‍රයේ ආපදා වැඩි වීමට හේතු දෙකක් සඳහන් කරන්න.

1...

2... (2X2 = 4)

II. කෘෂිකර්මාන්තයේදී ගොවින්ට ඇතිවන ආතතිය වැලැක්වීමට ගත යුතු ක්‍රියාමාර්ග දෙකක් සඳහන් කරන්න.

1...

2... (2X2 = 4)

3) A) පාලිත තත්ව යටතේ බෝග වගාවේදී වායව හා පාංශු තත්ව පාලනය සඳහා ආරක්ෂිත ව්‍යුහ යොදා ගනියි.බෝග වගාවේදි භාවිත වන තාවකාලික ප්‍රචාරක ව්‍යුහ ආකාර තුනක් සඳහන් කරන්න.

1...

2...

3... (3x2 = 6)

B) නිෂ්පාදන වගාව නවින කෘෂිකර්මාන්තයේදී ඇතිවන ගැටලු අවම කිරිමට භාවිත වගා ක්‍රමයකි.නිර්පාංශු වගාවෙහි එවැනි වැදගත්කම් දෙකක් සඳහන් කරන්න.

1...

2... (2x3 = 6)

Past Papers Wiki
CamScanner

C) කෘමි පලිබෝධකයින් කෘමි ගෝත්‍ර ලෙස වෙන් කිරීම මගින් ඔවුන් හඳුනාගෙන පාලන ක්‍රම යෙදීමට පහසු වේ.

පහත සඳහන් කෘමි පලිබෝධ වර්ග ඔවුන් අයත් වන ගෝත්‍රය හා හානිය සිදු කරන මුඛ උපාංග ආකාරය සඳහන් කරන්න.

කෘමි වර්ගය	කෘමි ගෝත්‍රය	මුඛ උපාංග
I. සේනා දලඹුවා	....	....
II. කළු පොල් කුරුමිණියා	....	....
III. දුඹුරු පැළ කීඩැවා	....	....
IV. ඉල් මැස්සා	....	....

(8 x 2 = 16)

D) රෝග ත්‍රිකෝණය බෝග වගාවේ රෝග හඳුනා ගැනීමට සහ පාලනයට යොදා ගන්නා ආකෘතියකි.

I. පහත දැක්වෙන රෝග ත්‍රිකෝණයේ A,B හා C පාද නම් කරන්න.

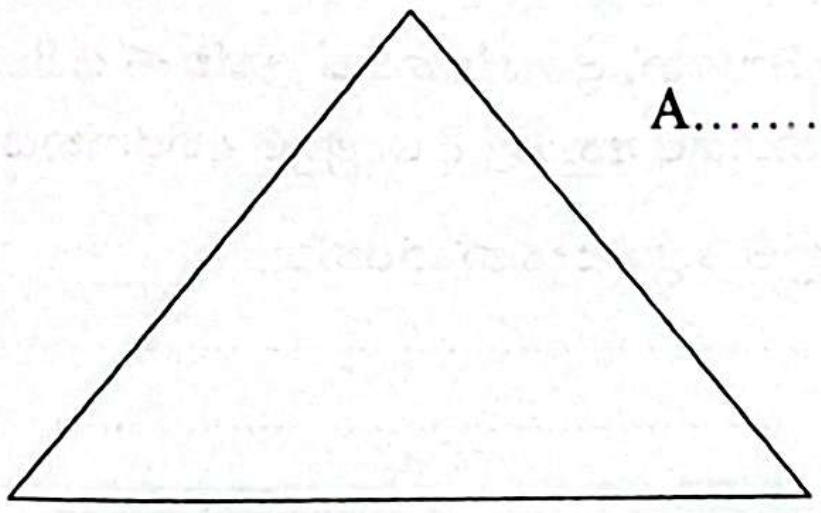

(3x3 = 9)

II. ශාක රෝග පැතිරීමේ ප්‍රධාන ක්‍රම දෙකක් සඳහන් කරන්න.

1...

2... (2x 3 = 6)

III. ශාක රෝග පාලනය සඳහා යොදා ගන්නා ශෂ්‍ය විද්‍යාත්මක ක්‍රමෝපායන් දෙකක් සඳහන් කරන්න.

1...

2... (2x 3 = 6)

E) පලිබෝධනාශක යෙදීමේ විවිධ උපකරණ භාවිත කරන අතර ඒවා විවිධ නිර්ණායක අනුව වර්ග කෙරේ.පහත එක් එක් නිර්ණායක යටතේ පලිබෝධනාශක යොදන උපකරණ වර්ගීකරණය කරන්න.

I. රසායනික ද්‍රව්‍යයේ භෞතික ස්වභාවය අනුව පලිබෝධනාශක යොදන උපකරණ

1...

2...

3...

4... (4 X 3 = 12)

II. අභ්‍යන්තර ක්‍රියාකාරිත්වය යටතේ පලිබෝධනාශක යොදන උපකරණ

1...

2... (2X 3 = 6)

III. දියර යොදන ප්‍රමාණය අනුව පලිබෝධනාශක යොදන උපකරණ

1...

2...

3... (3X 3 = 9)

අ.පො.ස උසස් පෙළ සියලුම විෂයන්ට අදාළ ප්‍රශ්න පත්‍ර/පිළිතුරු පත්‍ර/සටහන් ලබා ගැනීමට Past Papers Wiki වෙත පිවිසෙන්න
CamScanner

F) එක් ව්‍යාපාරයක අතුරුඵල වෙනත් ව්‍යාපාරයක අමුද්‍රව්‍ය ලෙස යොදා ගනිමින් කටයුතු කිරීම සමෝධනික ගොවිතැන වේ.සමෝධනික ගොවිතැනේදී ක්‍රියාත්මක වන ප්‍රධාන පද්ධති සඳහන් කරන්න.

1...

2...

3...

4... **(4X 3=12)**

G) තිරසර කෘෂිකර්මාන්තයේදී විවිධ බෝග වගා රටා හා ක්‍රම භාවිතා කරමින් පරිසරයට වන අවම කිරීමට උත්සහ කරයි.

I. තිරසර කෘෂිකර්මාන්තයේදී භාවිත කරන බහු බෝග රටා ආකාර දෙකක් සඳහන් කරන්න.

1...

2... **(2 X 3 = 6)**

II. ඒක බෝග වගා පද්ධතින් සඳහා වන උදාහරණ බෝග දෙකක් සඳහන් කරන්න.

1...

2... **(2 X 3 = 6)**

4) A) පසු අස්වනු හානිය ශ්‍රී ලංකාවේ කෘෂිකර්මාන්තය මුහුණ පා ඇති ප්‍රධානතම ගැටලුවකි.

I. බෝග වලට පසු අස්වනු හානිය සිදුවිය හැකි අවස්ථා දෙකක් සඳහන් කරන්න.

1...

2... **(2 X 2 = 4)**

II. පලතුරු වල පරිගණක දර්ශක මැනීමට භාවිතා කල හැකි උපකරණ දෙකක් සඳහන් කරන්න.

1...

2... **(2 X 3 = 6)**

III. බෝග අස්වනු නෙලීමේදී පරිණත බව දැන සිටීමේ වැදගත්කම් දෙකක් සඳහන් කරන්න.

1...

2... **(2X 3 = 6)**

B) ක්ෂීරණ මුරයක් තුල වියළි ද්‍රව්‍ය ආගනුව කිරි නිෂ්පාදනය හා දේහ බර වෙනස් වන ආකාරයේ පහත ප්‍රස්ථාරයෙන් නිරූපනය වේ.

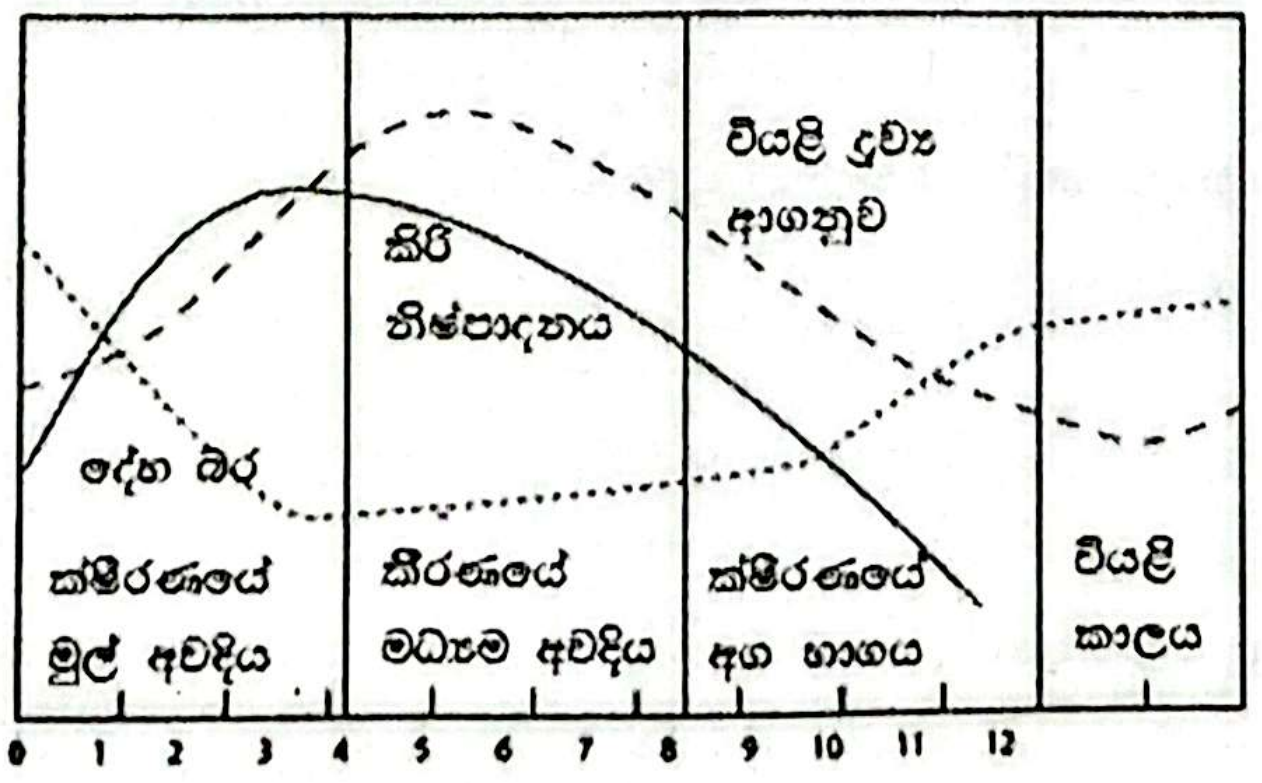

I. ඉහත සඳහන් ලෙස ගව දෙනුන්ගේ වියළි කාලය යන්න හඳුන්වන්න.

....

.... (1X 4 = 4)

II. ඉහත ප්‍රස්ථාරයේ දැක්වෙන පරිදි වියළි කාලයේදී වියලි ද්‍රව්‍ය ආගනුව ක්‍රමයෙන් අඩු වීමට හේතුව සඳහන් කරන්න.

....

.... (1X 4 = 4)

III. ගව දෙනුන් වියළි කිරීමේ වැදගත්කම් දෙකක් සඳහන් කරන්න.

1...

2... (2X 4 = 8)

C) කුකුළු පැටවුන් පාලනය සම්බන්ධව පහත ප්‍රකාශ සත්‍ය හා අසත්‍ය බව සඳහන් කරන්න.

I. කුකුළු පැටවුන් බෲඩරයට හඳුන්වා දුන් පලමු දින 2 – 3 තුල උතුරුවා නිවාගත් ජලය මද උණුසුම් ව තිබියදී පානයට ලබා දිය යුතුය. ....

II. පැටවුන් රක්කවන බෲඩරයේ චික් ගාර්ඩ් එක භාවිත කරනුයේ කුකුළු පැටවුන්ට අවශ්‍ය නියමිත උෂ්ණත්වය ඇති ප්‍රදේශයේ ඔවුන් රඳවා ගැනීමේ අරමුණකි. ....

III. කුකුල් ආහාර සලාක අතුරින් අඩුම ප්‍රෝටීන ප්‍රතිශතයක් ඇත්තේ පැටවුන් සඳහා වන ආහාර සලාකයේය. ....

IV. කුකුල් පැටවුන් සඳහා මරෙක්ස් එන්නත සති 3 කදී ලබා දිය යුතුය ....

(4X 2 = 8)

D) ගොවිපල සතුන්ගේ වර්ධනය ,නිෂ්පාදනය මෙන්ම නිරෝගී බවට ඔවුන්ට ලබා දෙන ආහාර වැදගත් වේ.පහත එක් එක් ආහාර ආකාර සඳහා උදාහරණය බැගින් සඳහන් කරන්න.

I. පෝෂ්‍ය රනිල ....

II. ශාක සම්භවයක් සහිත ප්‍රෝටීන පරිපූරක ....

III. කාබෝහයිඩ්‍රේට ශක්ති පරිපූරක .... (3X2 = 6)

E) ගවයාගේ ආහාර ජීරණ පද්ධතියේ සංකීර්ණ ආමාශයේ රූප සටහනක් පහත දැක්වේ.

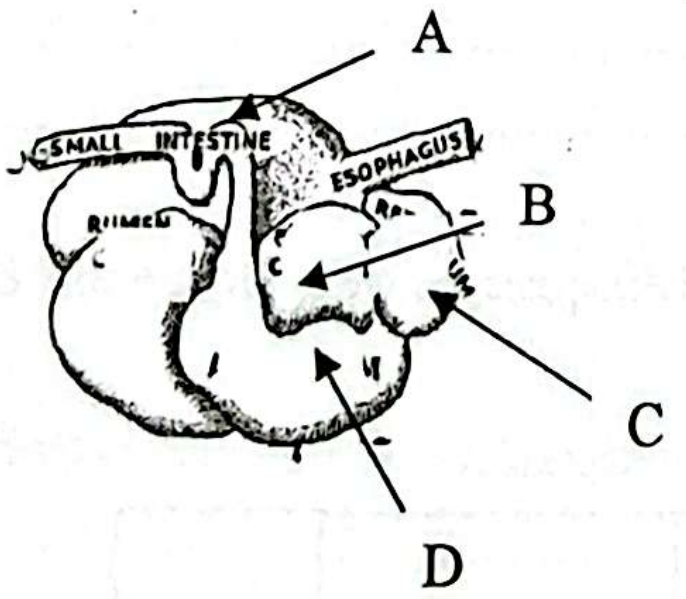

මෙහි පහත කොටස් වලින් ඉටුවන ප්‍රධාන කාර්යය සඳහන් කරන්න.

A. ....

B. ....

C. ....

D. .... (4X 3 = 12)

II. ඉහත කොටස් අතුරින් වසු පැටවකුගේ ඌන වර්ධනයක් පෙන්වන කොටස සඳහන් කරන්න.

.... (1 X 3 = 3)

අ.පො.ස උසස් පෙළ සියලුම විෂයන්ට අදාල ප්‍රශ්න පත්‍ර/පිළිතුරු පත්‍ර/සටහන් ලබා ගැනීමට Past Papers Wiki වෙත පිවිසෙන්න
CamScanner

MCQ

පිළිතුරු

13 ශ්‍රේණිය
කෘෂි විද්‍යාව (2025)

1	3	21	3	41	2
2	2	22	3	42	5
3	1	23	2	43	2
4	2	24	3	44	5
5	2	25	2	45	2
6	4	26	3	46	5
7	2	27	1	47	3
8	4	28	2	48	3
9	2	29	~~3~~ 5	49	4
10	3	30	2	50	4
11	3	31	4		
12	2	32	4		
13	4	33	3		
14	2	34	4		
15	4	35	2		
16	1	36	2		
17	3	37	2		
18	5	38	3		
19	1	39	2		
20	4	40	2		

CamScanner

ව්‍යවහාරික රසා - පිළිතුරු.

1) (A)

I වී , කිරි , දිව , එළවළු (ඕනෑ 2ක්)

II සහල් , [illegible]

III පොලිෂ් කස , ස හාල් , පොල් උත්පාදන , දහයියා ,
ලී කුඩු ; සහල් පිටි . . . etc.
(3 × 2 = 6)

(B) I පෙරහල් යාන්ත්‍රණය
සංචලන යාන්ත්‍රණය
කාලීනක හැකියා (3 × 2 = 6)

II a) කිරිබ දිග පෙරහන වැනි
b) දෙමළ අත්තර පෙරහන වැනි
c) පාලම් වල අත්තර පෙරහන වැනි (3 × 2 = 6)

2) I වගා කිරීමට උචිත පෙදෙස තෝරා ගැනීම /
වළ සකසීමට උචිත කාලය උපකරණ තෝරා
ගැනීම / සිංහලෙට සුදුසු පැළ පාලනය සුව
සැලසුම් කිරීම / පැළ පාලනය කාලාන්තරය
නිර්ණය කිරීමට / සිංහලෙට සුදුසු පාත්ති
වර්ගය නිර්ණය කිරීම (2 × 3 = 6)

II වළ සකසීම එහි පස බුරුල් කිරීම /
පසට කාබනික පොහොර එකතු කිරීම (2 × 3 = 6)

III කාබනිකත්වය / ගැඹුර / ව්‍යුහය / ජලවහනය
/ ගැලවුම / ගති කාබනිකත්වය . (4 × 2 = 8)

3) I 8000g ආලෝකතාවය . (1 × 3 = 3)

II පුත්‍ර 3ක / පොලොවෙන් / පුත්‍ර කුඩු / ...
දියා පුත්‍ර . . (1 × 3 = 3)

4) I රසායනික පොහොර / ජෛව පොහොර /
කාබනික පොහොර (3 × 3 = 9)

II ජෛව පොහොර (1 × 2 = 2)

III ඕනෑම උදාහරණයක් 3 1 × 2 = 2)
compost , vermicompost , cow dung manure , Green manure
Bone meal , Fish emulsion , oil cake fertilizer .

අ.පො.ස උසස් පෙළ සියලුම විෂයන්ට අදාල ප්‍රශ්න පත්‍ර/පිළිතුරු පත්‍ර/සටහන් ලබා ගැනීමට Past Papers Wiki වෙත පිවිසෙන්න
CamScanner

IV පස ආවරණය වීම / විෂ රසායන භාවිත අඩු වීම / හිතකර ජීවී ගහනය අඩු වීම / පලතුරු නිෂ්පාදනය අඩු වීම / ශාක රෝගවල වී රෝග පළිබෝධ ආක්‍රමණය වැඩි වීම / ...... (2×3 = 6)

(F) I පැසීම ශීඝ්‍ර වීම / ඉදීම ශීඝ්‍ර වීම / වර්ණය ඇති කිරීම හා මෘදු කිරීම. (3×3 = 9)

II [illegible] [illegible] (1×2 = 2)

(G) I [illegible] පල සංවර්ධකය. (1×3 = 3)

II වාසි → තොකඩවා පලය ලබාගත හැකි වීම / පල නියමිත කාලයකට තොරව පලය ලබාගත හැකි වීම /

අවාසි → පලය උත්පාදනය වීම / ලවණතා සහිත පලය අඩු වීම. (2×3 = 6)

II i ඉතා කරන රෝගයට ප්‍රතිරෝධී ... පලය ලබා ගැනීමට හැකියාවක් / ඒ පලය ගුණාත්මක තත්ත්ව හා අනුකූලව වලින් තොර වීම / සිරිවැඩ / ඉතා ... හා පල ... අතර දුර / ... පල ... කුමය හා ... .

(3×3 = 9)

(H) I වර්ධනාගාර රෝපණ

වර්ධනාගාර ... (2×2 = 4)

II පල ... ගත්ත ... වීම / ... ගත්ත ... වීම / ... වීම / රෝග හා පළිබෝධ වැළැක්වීම / ... / පලතුරු වල ... .

(2×2 = 4)

2) (A) I ඉදුණු ඵල ගොනුව රෙදිවලින් ඔතා තැබීම / හොඳින් කාලවල නිතර නිතර ඵලය ද නෙළා ගැනීම / ඊට පසු කාල වීම / සහිත බඳුන්වල, ආවරණවල සිටුවීම / ඵලය ප්‍රමාණවත් වලින් කොට ප්‍රවේශමෙන් ඵලය කාන්දු වීම.

(2×2=4)

II හයිබ්‍රිඩ් සල්ෆයිට් / ලුනුවත් (2×2=4)

III එකු කොට තැබීම / ශාක වර්ධනය අඩාල වීම / ශාක මුල් හානිවී පොහොර ලබා ගැනීම ශාක මිය යෑම.

(2×2=4)

(B) I විකරණය / සංකරණය / ආනුවංශික / බහුගුණක සහිත විකරණය

(2×2=4)

II උත්පාදන ප්‍රචාරණය / මුල් පිහිටීම (2×2=4)

III රෝග වලින් ගැලවීම / විකරණ සාමාන්‍ය කාලය.

(2×2=4)

(C) I a – කලිව
b – අතු කැබලි
c – සංයුක්ත අතු බැඳීම. (4×3=12)
d – ගැට / පාලම් බද්ධය / අංකුර බද්ධය.

II a) අභ්‍යන්තර → අතු කැබැල්ලේ වයස / පරිණත බව
→ අතු කැබැල්ලේ අඩංගු පෝෂක ප්‍රමාණය
→ ,, අඩංගු හෝර්මෝනක ප්‍රමාණය

b) බාහිර → ආලෝකය
→ උෂ්ණත්වය
→ ජලය / ආර්ද්‍රතාවය.
→ මුල් ඇද්දීමට යොදා ගන්නා මාධ්‍ය

(4×3=12)

අ.පො.ස උසස් පෙළ සියලුම විෂයන්ට අදාල ප්‍රශ්න පත්‍ර/පිළිතුරු පත්‍ර/සටහන් ලබා ගැනීමට Past Papers Wiki වෙත පිවිසෙන්න
CamScanner

-5-

(D)

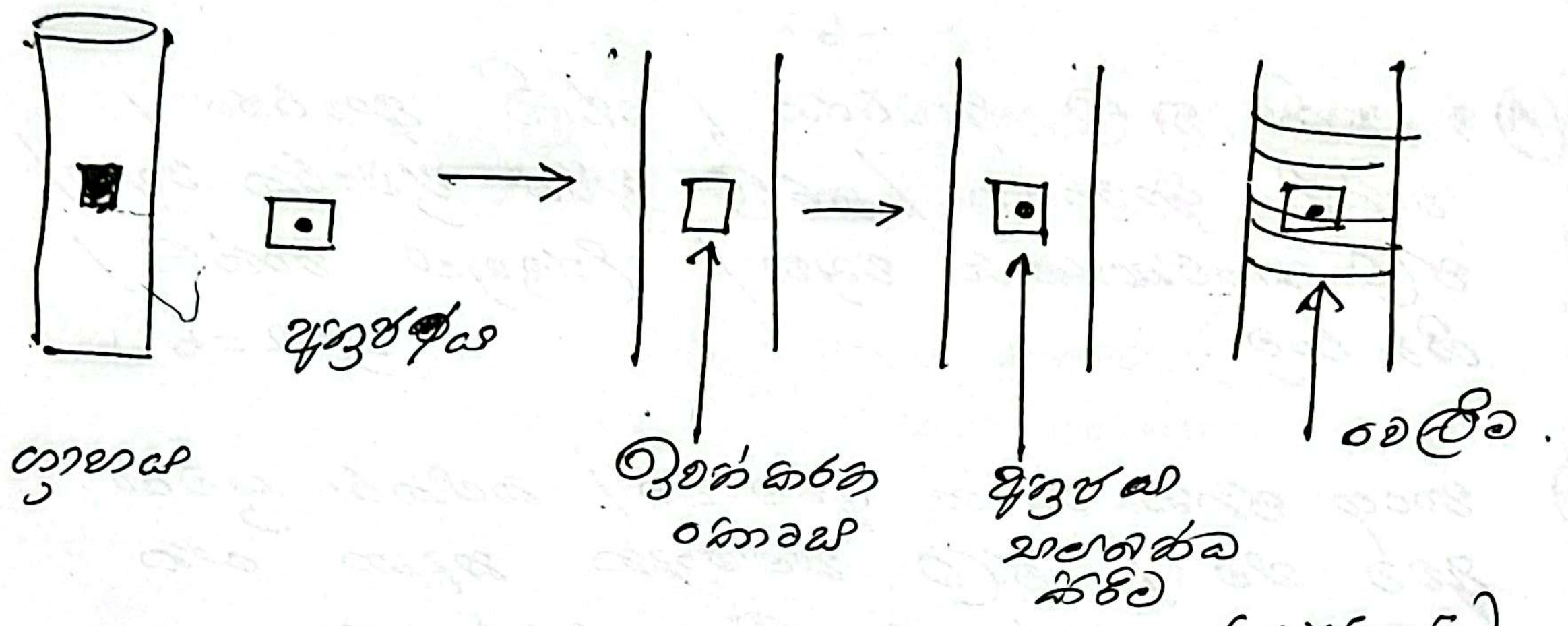

(1×5=5)

(E) I a) රේරුව සහ අග්‍ර මේරි දඬු
b) අග්‍ර
c) ළං කොළ
d) ළං කිලි (4×3=12)

II a) වශංවර්ධනයේ දිලීර රෝගවලින් වලිය සහ හානිය වැළකීම වේගය ගුණ වලිය ආශ්‍රිත කොවීම

b) සාකල වශංවර්ධනය වලිය හා වාගය. වැඩිකරනයට ගාවා අඩු වල.

c) වශංවර්ධනයේ ඕනෙවක රෝගයකි ඉවත් ශුද්ධ වල. (3×3=9)

(F) I මිහිත උනු.
II pH මට්ටම (2×3=6)

(G) I තුළුතුන් පෙළ වර්ගය / සමූහ වර්ගය (2×3=6)
II දෛනික ක්ං ලිංග වෙලීම / බහුතුත්ත මිශ්‍ර (2×3=6)

(H) I කෘෂිකර්මාන්තයේ යොදන්නන් මහත දේශගුණික තත්ව වලට ඔරොත්තු දෙන ලෙස කිරීම. / රසායන ද්‍රව්‍ය භාවිතය අඩු වීම / කෘෂි යාන්ත්‍රීකරණය භාවිතය. (2×2=4)

II පැලෑටි පරිවර්තනයට අවශ්‍ය පහස ලබාදීම / විකෘතියට සිදු කිරීම / ඇමිනීම / වගාව / සාවකා කිරීම / වෙන් කිරීම / නැංගෙන් පොළොව වලින් වැළකීම. (2×2=4)

3 (A) තනි පැල ආවරණ / පේළි ආවරණ / හන්ති ආවරණ / සරල සූර්ය ප්‍රභාරක ව්‍යුහ / පැල සංරක්ෂණ ව්‍යුහ / උමංකූල හන්ති / ජීව වැට. (3×2=6)

(B) වාංගු ජනන රෝග අවම වීම / කම්කරු ශ්‍රමය අවම වීම / පැල සමාරෝපණ සඳහා යන වියදම අඩු වීම / විශාල බිමක් අවශ්‍ය නොවීම / පෙළ වගාව හා යාන්ත්‍රික රෝපණය වඩා පහසු වීම. (2×3=6)

(C)
I ලෙපිඩොප්ටෙරා ගෝත්‍රය, සපා කන මුඛ උපාංග
II කෝලියොප්ටෙරා ගෝත්‍රය, සපා කන මුඛ උපාංග
III හෝමොප්ටෙරා ගෝත්‍රය, විද උරා බොන මුඛ උපාංග
V ඩිප්ටෙරා ගෝත්‍රය, විද උරා බොන මුඛ උපාංග. (8×2=16)

(D)
I A. රෝගකාරකයා, පරිසරය, රෝග ධාරකයා (3×3=9)
II දිලීර / බැක්ටීරියා / වෛරස / රෝග වාහකයන් මයිටා / උණ්ඩකරන මයිටා (2×3=6)
III නිරෝගී රෝපණ ද්‍රව්‍ය භාවිතය / බීජ පිරියම් කිරීම / විකල්ප ධාරක පාලනය කිරීම / වගා වල පිරිසිදුව තබා ගැනීම / ක්‍රමානුකූලව වල සකස් කිරීම / ක්‍රමානුකූලව පොහොර යෙදීම / බීජ පිරියම් කිරීම / පැල අතර නියමිත පරතරය පවත්වා ගැනීම / වල පුරා කිරීම (2×3=6)

(E)
I දිය ඉසින / කට ඉසින / මුව ඉසින / මූල ඉසින (4×3=12)
II පිස්ටන් ආකාරයේ දියර ඉසින යන්ත්‍ර / බැලුංවල ආකාර දියර ඉසින යන්ත්‍ර (2×3=6)
III අධි පරිමා යන්ත්‍ර / මධ්‍ය - පරිමා යන්ත්‍ර / අති-අඩු පරිමා යන්ත්‍ර (3×3=9)

අ.පො.ස උසස් පෙළ සියලුම විෂයන්ට අදාල ප්‍රශ්න පත්‍ර/පිළිතුරු පත්‍ර/සටහන් ලබා ගැනීමට Past Papers Wiki වෙත පිවිසෙන්න
CamScanner

(F) රබර් වගාව / තල්ලංකයි පසකයා / සහල නාලිකය / ආරක්ෂක වගාව (4 × 3 = 12)

(G) I ලෑලි රබර් වගාව / අතුරු රබර් වගාව / කඩොලාන රබර් වගාව / සමඟ රබර් වගාව හෝ නාරං ව. (2 × 3 = 6)

II ඒ වගාව / එක් වගාව. (2 × 3 = 6)

(4) (A) I අස්වනු නෙලීමේදී / රස කිරීමේදී / පිරිසිදු කිරීමේදී / ශ්‍රේණි කිරීමේදී / ගබඩා කිරීමේදී / ප්‍රවාහනයේදී / අසුරණකරණයේදී / අලෙවියේදී. (2 × 2 = 4)

II දිගසා ලවරය / ලුණු ලවරය (2 × 3 = 6)

III සංවෘත අවස්ථාව හා පරිණතිය උපකාරවය දිගු කිරීම / නැවුම් ස්වභාවය ලබා ගැනීම / ප්‍රාණීන්ගේ ජීව කාලය වැඩිකර ගැනීම / වෙළඳ පොළ කාලය සඳහා සැපයුම් සැලසීම (2 × 3 = 6)

(B) I නැව් වත් කිරි ලබා ගන්නා දෙනගේ, ප්‍රසූතියෙම මාස දෙකකට පෙර කිරි දෙවීම නතර කිරීමයි. (කිරි වැසීම) (1 × 4 = 4)

II සාන්ද්‍ර ආහාර සැපයීම සාමාන්‍ය ප්‍රමාණයට වඩා 10% කින් වැඩි කරනු ලැබේ. (1 × 4 = 4)

III කලලයේ වැඩීම / ඊළඟ කිරි දුවීම සඳහා අවශ්‍ය පෝෂ්‍ය පදාර්ථ ශරීරයේ තැන්පත් කර ගැනීම / තුරුලේ පෙශී පටක ඇලෙන් වැඩිවීම. 2(× 4 = 8)

(C) I සත්‍යය

II සත්‍යය

III අසත්‍යය.

IV අසත්‍යය (4 × 2 = 8)

(I) I රැලිස්සවා / බෙල් බෙල් / කරබු
II කොරයා ප්‍රභේදය / පරිපූර්ණ කුඩු.
III පහල් කිරුලු / පොල් ප්‍රභේදය. (3×2=6)

(5) I A- ආහාර සුද්ධිය පැසවීමකට ලක් වීම
B- ආහාර සුද්ධිය පැසවීමකට ලක් වීම
C- ආහාරයේ ඉ ප්‍රෝෂ හා වර්ණ ප්‍රතිසංස්කරණය
D- රසායනික / කෘෂිරසායනික විෂිකරණයට ලක් වීම (4×3=12)
II සංරක්ෂණය / A කොටස (1×3=3)

) I විටමින් B. දියවීම හෝ ඉවත් කිරීම හැක.
II පැස්ටමියමිස රෝගය වැළැක්වීම
III පුල්ලෝරම් රෝගය වැළැක්වීම. (3×3=9)

) I රු. 250 , 800kg. (2×3=6)
II රු. බෝලිදුම - 1100kg (1×3=3)
සාපේක්ෂ - 600kg
III අස් බෝලුමක් (1×3=3)
IV 500kg. (1×3=3)
V ආයෝජනය කර හැකියාවයට ලබා දිය යුතුය (1×3=3)

I රජයේ ව්‍යාපාරයක සේවකයින් ලෙස කටයුතු කිරීම. තම පෞද්ගලික ව්‍යාපාරයක් ආරම්භ කිරීම / ස්වයං රැකියා ලෙස කටයුතු කිරීම සේවකයන්.
II වෙළඳපොළක් සෙවීම (2×3=6)
III පුහුණු කිරීමේ කාර්යය / තාක්ෂණික කාර්යයන් / මහජන සම්බන්ධතා කාර්යයන් (3×2=6)

CamScanner
අ.පො.ස උසස් පෙළ සියලුම විෂයන්ට අදාල ප්‍රශ්න පත්‍ර/පිළිතුරු පත්‍ර/සටහන් ලබා ගැනීමට Past Papers Wiki වෙත පිවිසෙන්න

(5) I බීජ වල ජීව්‍යතාව ආරක්ෂා කරගන්නා හැකි.
ක්‍රම විස්තර කරන්න

හැඳින්වීම.

තෙතමනය, උෂ්ණත්වය, වාතාශ්‍රය වැනි. බෝගයක තත්ව සාධක බීජ ප්‍රරෝහණයට එක වර හෝ ප්‍රරෝහණයෙන් පසු විවිධ ආකාර -වයසින් යුතු වන, මිය යාම වේ.

* උෂ්ණත්වය පාලනය කිරීම
  - ගබඩා වල උෂ්ණත්වය 5°C පමණ වනසේ තබා. ශ්වසනය ක්‍රියාකාරිත්වය අඩු වී ජීව්‍යතාවය රැකේ.
  - උෂ්ණත්වය ඉහළ යාමෙන් ජීව්‍යතාව පිරිහේ

→ උෂ්ණත්ව පාලනය.
  - ශීතක වල ගබඩා කිරීම ඇසුරුම.
  - එහා වාතාශ්‍රය සැපයීම.

2. වාතනය පාලනය කිරීම
→ ගබඩා වල O_2 වැඩි වීමෙන් ශ්වසනය වැඩි වීමෙන් ජීව්‍යතාවය අඩු වේ.
→ O_2 අඩු පරිසරයක බීජ ගබඩා කිරීම
→ O_2 අඩු, N_2, H_2 වැනි පරිසරයක බීජ ගබඩා කිරීම.

3. ආර්ද්‍රතාවය පාලනය කිරීම
→ විජලනකාරක, ආර්ද්‍රතාවය අවම කරන උපකරණ භාවිතයෙන් ආර්ද්‍රතාවය අඩු කිරීම
→ තෙතමනය ඇතුල නොවන සේ පොලිතීන් මලු හෝ බීජ වල ඇසිරීම

4. දිලීර, බැක්ටීරියා සහ කෘමීන් පාලනය.

- ගබඩා පිරිසිදු භාජනයේ හා ගබඩා කිරීම
- ගබඩා වල පැලුදු වූ ස්ථාන පිරියම් කිරීමෙන් කෘමි හානි වැලැක්වීම
- පැරණි රෝගී මුලු ගබඩා වෙළෙඳ භාණ්ඩයට ගැනීම
- ගබඩා ධූමකරණය කිරීම

5. යාන්ත්‍රික හානි පාලනය

- අස්වනු නෙළීමේදී, ඇසිරීමේදී, ප්‍රවාහනයේදී හා ගබඩා කිරීමේදී සිදුවන යාන්ත්‍රික හානි අවම කර ගැනීම.
- දියුණු තාක්ෂණික ක්‍රමවේද භාවිතය. (අස්වනු ඇසිරීමේදී)

හැඳින්වීම - 40.
කරුණු 5 × ලකුණු 8 → 40.
(කරුණ 3 × නම්: විස්තර 5)

II විකල්ප වගාවේ ගැටලු හා ඒවා අවම කිරීම ගත හැකි ක්‍රියාමාර්ග විස්තර කරන්න.

හැඳින්වීම -

වී වෙනුවම වෙනත් බෝගයක් යොදා ගනිමින් සිදුකරන බෝග වගාවයි.
සහල් නොවන බෝග වගාවයි.

ගැටලු

1. ශ්‍රී ලංකා නිම්නයන් විශේෂම ආවේක පෙනෙන් වැව් වර්ෂාකාල පාලිත බෝග සඳහා ජලය පරිමාණ වගාවකට සීමා වීම

අ.පො.ස උසස් පෙළ සියලුම විෂයන්ට අදාල ප්‍රශ්න පත්‍ර/පිළිතුරු පත්‍ර/සටහන් ලබා ගැනීමට Past Papers Wiki වෙත පිවිසෙන්න
CamScanner

2. පරිසර සේව රජයට වඩාත් වැදගත්. එමනිසා සෑම එවැනි පරිසර වල තොරතුරු සොයන්න අංශකීය විශ්ල යෝජන සෑමවිට සිදු වීම
3. තාක්ෂණ වියදම අවශ්‍ය වීම
4. දීර්ඝකාලීන ප්‍රතිලාභ අවම වීම
5. ඇල දේශගුණයෙන් උවදුරු අහිතකර ප්‍රතිඵල. ඇති වීම
6. නුපුහුණු ශ්‍රමිකයින් හා තාක්ෂණික දැනුමක් අවශ්‍ය වීම
7. විශාල ප්‍රමාණයකින් යුතු වියදම් මාධ්‍ය, රෙගුලාසි ද්‍රව්‍ය, පෙරලීම අවශ්‍ය වීම
8. අවසාන විශ්ලේෂණයේ ගැටලු ඇති වීම.

විසඳුම්

1. විකල්ප සේවාවන් අලෙවි කිරීම
2. වියදම් අවම කර ගැනීමට රජය හා පෞද්ගලිකාංශ සහාය.
3. ශ්‍රමිකයින් පුහුණු කිරීම හා දැනුම ලබා දීම
4. විශ්ලේෂණ ව්‍යාපෘති දියුණු කිරීම

හැඳින්වීම – ලකුණු 10
ගැටලු 5 × ලකුණු 5 → 25
විසඳුම් 3 × ලකුණු 5 → 15

(iii) වර්ධක යාමක වල කෘෂිකාර්මික භාවිතයන් විස්තර කරන්න.

හැඳින්වීම

ශාක වර්ධනය යාමනය කිරීම සඳහා කෘත්‍රි-ම නිපදවනු ලබන ඉතා අඩු සාන්ද්‍රණවලින් ක්‍රියාශීලී වන ~~ශාක~~ ශාක හෝර්මෝනමය වර්ධක යාමක වේ.

1. ඔක්සින
   - අතු කැබලි මුල් ඇද්දවා ගැනීම. (NAA / IBA)
   - අන්නාසි වල මල් හට ගැනීම උත්තේජනය.
   - ජංගාංශි ඵලත ඇකිලීම වැළැක් කර ගැනීම.
   - නා. සිරතාවලනය වැළැක් කර ගැනීම.
   - වල් ප්‍රරෝහණය මැඩ දියත් කර ගැනීම.
   - වල්නාශක ලෙස (2,4.D)
   - පටක රෝපණයේ මුල් ඇද්දීම ගැනීම.)
   - ඵල හට ගැනීම වැඩි කිරීම.
2. සයිටොකයිනින්
   - මුල් වර්ධනය පාලනය කිරීම.
   - පටක රෝපණයේදී ප්‍රරෝහ මුලිකල විභාජකතාය සිදු කිරීම.
   - පාර්ශ්වික අංකුර උත්තේජනය.
3. ජිබරලින්.
   - ශාක වල තරුණාවය ඉවර කිරීම
   - බීජ ජනනය ප්‍රමාද කිරීම
   - ඵල මේරීම යාම පාලනය කිරීම
   - බීජ සුප්තතාව ඉවත් කිරීම
   - ඵල හා බීජ විශාල කර ගැනීම - යේවා -

4. එතිලීන්
- ඵල ඉදීම ශීඝ්‍ර කිරීම
- පුෂ්පීකරණය උත්තේජනය
- රබර් කිරි ඇතිවීම උත්තේජනය කරයි
- විසිතුරු ශාක වල ඵල හට ගැනීම වැළැක්වීම

5. ඇබ්සිසික් අම්ලය
- බීජ හා ඵල සුප්තතාව උත්තේජනය
- පත්‍ර වල පූටිකා වසා කිරීම.
- පත්‍ර ඉවාල වූ විට පරිවෘත්තිය -
මඟින් ආරක්‍ෂා වීම

හැඳින්වීම — ලකුණු 10.
වර්ධක යාමක 4 × නම් කිරීම ලකුණු 4 → 16
4 × කාර්යය ලකුණු 6 → 24
(කාර්ය 2 × ලකුණු 3)

5) I එක ක්ෂේත්‍රයක ජල සම්පාදන කාර්යක්ෂමතාව ඉහළ නැංවීමට යොදා ගත හැකි ක්‍රමෝපායන් විස්තර කරන්න

හැඳින්වීම -

ජලසම්පාදනය කළ ජලයෙන් කොපමණ ප්‍රමාණයක් බෝගය මඟින් ප්‍රයෝජනයට ගනී ද යන්න ප්‍රතිශතයක් ලෙස දැක්වීම ජල සම්පාදන කාර්යක්ෂමතාවය යි.

1. කාබනික ද්‍රව්‍ය පසට යොදා ජලය රඳවා ගැනීමේ හැකියාව වැඩි දියුණු කිරීම
2. පාංශු තෙතමන සංවේදක භාවිත කර. ජලය යෙදිය යුතු ප්‍රමාණය ගණනය කර. ජල සම්පාදනය කිරීම.
3. ක්ෂේත්‍රයේ වල් පැළ පාලනය
4. නිසිට වතුර යෙදීම
5. ශු පැලං නායක යෙදීම
6. බහු ස්ථර බෝග වගාව (විවිධ ගැඹුරට වැවෙන මුල් සහිත බෝග වගාව)
7. පස ගුලි කිරීම මගින් පසේ පාරගම්‍යතාව වැඩි දියුණු කිරීම
8. උචිත / කාර්යක්ෂම ජල සම්පාදන ක්‍රම භාවිතය (බිංදු ජල සම්පාදනය)

හැඳින්වීම - ලකුණු 10.
කරුණුවලට 5 × ලකුණු 8 = 40
(කරුණ 3 × ~~හැඳින්වීම~~ විස්තර 5)

III පාරිසරික බලපෑම්

ක්ෂේත්‍රයේ වල් පැළ පාලනය සඳහා යොදා ගන්නා රසායන ද්‍රව්‍ය වල්නාශක වේ.

හානිකරයි වේ.

1. ප්‍රධාන ආරක්ෂිත ඇතුළු ඇතිවීම - මුල, අග්‍ර, කඳ ආවරණය හැලීම
2. වල්නාශකයේ ශේෂ බලපෑම කලක් දිගු කලක් ක්‍රියා කිරීම.
3. ප්‍රතිරෝධී ජීවීන් තෝරා ගැනීම
4. ජීවී යන්ත්‍රයේ ප්‍රතිරෝධී කොටසේ හානිය

5. උපකරණයේ ක්‍රියාකාරිත්වය නිවැරදි දැයි පරීක්ෂා කිරීම

6. අදාළ ද්‍රව්‍ය උපකරණ භාවිතයෙන් විලේපනය ද්‍රාවණ කිරීම ද්‍රාවණය සකසීම

7. [struck-out word] ඉක්මනින් භාවිත කිරීම නිවැරදිව ඉවත් කිරීම [illegible]

8. සෑම විලේපනයක්ම ද්‍රව කිරීමට කෙටිවෙලාවක් භාවිතය

භාවිතයේදී සහ යෙදීමේදී

1. පැහැදිලි ආලෝකය ඇති විවෘත ස්ථානය වැඩ කිරීම
2. පුළුල් තරම ඉඩකඩ ලබාගැනීම
3. ඉතිරි අවශ්‍යතාවල ආහාර පාන, ද්‍රව්‍ය පිරිසිදුව තැබීම
4. යොදන ආකාරය ආරක්ෂිත වීම නොදැනීම
5. කොණ්ඩය සිර වූ විට සම්බන්ධ කිරීම කෙසේ කොණ්ඩය යොදා ගැනීම හෝ ගැලවීම. ගොදුර පිරිසිදු කිරීම

භාවිතය අවසානයේ

1. සියලු ආයුධ සියල්ල ගොනුකර තැබීම
2. භාවිත කළ උපකරණ සෝදා පිරිසිදු කිරීම (පිළිවෙලට තැබීම)
3. අත් පිස් අතුල්, ගෙවිරේ සබන් දා. පිරිසිදු කර ගැනීම.
4. ඉතිරි අවශ්‍යතාවල වැඩි පැණි ගෙවීර අවශ්‍යතා ඇති ඉවතලන් ආකාරය පමණ. රේඛාලිත කිරීම

හැකියාව - ලකුණු 5

භාවිතයට පෙර	කරුණු	3 × 5	→ 15
භාවිතයේදී	කරුණු	3 × 5	→ 15
භාවිතය	අවසානයේ	3 × 5	→ 15
			45

CS CamScanner

III කෘෂිකාර්මික ගොවිපළ ගොවි යාන්ත්‍රීකරණයේ ප්‍රධාන අරමුණු විස්තර කරන්න

හැඳින්වීම —

බිම් පරිශ්‍රමය හා වියදම අඩු කර ගොවිතැන් වර්ධනයක් ලබා ගැනීම සඳහා යන්ත්‍ර යොදා ගැනීම යාන්ත්‍රිකරණයයි.

අරමුණු

1. රෝපණ වගාවට අවශ්‍ය වැඩිදියුණු පැළ සපයා ගැනීම
2. වල් පැළ පාලනය කිරීම
3. රෝග හා පළිබෝධ පාලනය කිරීම
4. කාබනික 3 වන පස සාරය වැඩි කිරීම
5. ජලය ආදී අවශ්‍යතා 3 වන වර්ධනය කිරීම.
6. බෝග හා ඵල සංරක්ෂණය කිරීම.
7. වැඩි අස්වැන්නක් ලබා ගැනීමට අවශ්‍ය තත්ත්ව ලබා දීම

හැඳින්වීම — 10
කරුණු 5 × ලකුණු 8
(කරුණු 3 × විස්තර කිරීම 5)

7) I බහුකාර්ය සංවර්ධන ව්‍යාපාර ශ්‍රී ලංකාවේ ගැමි, ආර්ථික සංවර්ධනයට දක්වන ලද දායකත්වය විස්තර කරන්න.

බහුකාර්ය සංවර්ධන ව්‍යාපාර හැඳින්වීම.

අ.පො.ස උසස් පෙළ සියලුම විෂයන්ට අදාල ප්‍රශ්න පත්‍ර/පිළිතුරු පත්‍ර/සටහන් ලබා ගැනීමට Past Papers Wiki වෙත පිවිසෙන්න
CamScanner

ප්‍රතිලාභ

1. ~~[illegible]~~ [illegible].
යෝජිත ක්‍රම නිසා ඉඩම් අහිමි වූ ජනතාවට සහ. ජලගැලීම් ඇතිවූ ප්‍රදේශවල සිටි ජනතාව මෙම අලුත් ඉඩම් වල පදිංචි කිරීම ~~[illegible]~~.
2. නව රැකියා ජනනය වීම නිසා රට තුල, රැකියා නියුක්තිය ඉහළ යාම
3. වගා කරන වගාවලට ජලය සැපයීම නිසා. කන්න දෙකම වගා කිරීමට හැකි වීම.
4. වගා කිරීම නව ඉඩම් ලැබීම, ජලය හා පහසුකම් ලැබීම නිසා ආහාර නිෂ්පාදන යහ ඉහළ යාම සහ ආහාර සුරක්ෂිතතාව ඉහළ යාම
5. ජනතාවගේ ජීවන තත්වය ඉහළ යාම හා. සංචාරක ජනතාවක් ඇති වීම
6. රට තුල කෘෂි නිෂ්පාදන ඉහළ යාම නිසා. ආනයනය අඩු වී විදේශ විනිමය ඉතිරි වීම
7. රට තුල ගම්වල පහසුකම් දියුණු වීම ආර්ථික හා සමාජ සංවර්ධනයක් ඇති වීම,
8. ජල විදුලිය ලැබීම නිසා නව කර්මාන්ත ඇති වීම. එමගින් රටේ ආර්ථික සංවර්ධනය ඇති වීම
9. සංචාරකයින්ගේ පැමිණීම සඳහා ඉහළ ඉල්ලුමක් ඇති වීම නිසා ඒ ආශ්‍රිත ~~කර්මාන්ත~~ ව්‍යාපාර ඇති වීම
උදා - ලෝහ නිෂ්පාදන, යන්ත්‍රෝපකරණ.
10. ආර්ථික සංවර්ධන ව්‍යාපෘතීන් ඇති වීම නිසා ග්‍රාමීය වෙළඳපොළ ජාලය දියුණු වීම
11. ~~මෙම~~ මෙම යෝජනා ක්‍රම මගින් ලැබෙන ආදායම මගින් සංවර්ධන ව්‍යාපාර සඳහා යෙදවීමට හැකි වීම

හැඳින්වීම — 8.
කරුණු 6 × ලකුණු 7 = 42
(හෝ: 3× ලකුණු 4)

CamScanner

II දේශගුණික සාධක ප්‍රශස්තව නොලැබුනු විට බෝගය වගාවට ඇති වන අහිතකර බලපෑම් විස්තර කරන්න.

හැඳින්වීම.

දේශගුණික සාධක යනු යම් ප්‍රදේශයක දේශගුණය හා / හෝ කාලගුණයට බලපාන භෞතික සාධක වේ.

උදා :- ආලෝකය, උෂ්ණත්වය, සුළඟ, වර්ෂාපතනය, ආර්ද්‍රතාවය

වර්ෂාපතනයේ අහිතකර බලපෑම

* අධික වර්ෂාව නිසා →
1. ශාක මැරී යාම
2. මල් පල හා මල් හැලීයාම
3. රෝග හා පළිබෝධ ව්‍යාප්තිය
4. පල ඉරීම
5. සූර්යාලෝකය නොලැබීම නිසා ප්‍රභාසංශ්ලේෂණ ක්‍රියාවලිය අඩු වී ඵලදාවය අඩු වීම

** අඩු වර්ෂාපතනය →
6. බෝගය වගාවට ජල හිඟය ඇතිවීම
7. නියං තත්ව ඇතිවීම
8. පස් ලවණතාව ඇතිවීම

උෂ්ණත්වයේ අහිතකර බලපෑම

*. වැඩි උෂ්ණත්වය
1. රාත්‍රී වැඩි උෂ්ණත්වය ආහාර නිෂ්පාදනය අඩාල කරයි
2. උත්ස්වේදනය වේගවත් වීම
3. පුෂ්ප හා පරාග වියළීම
4. පත්‍ර මිලිස්සීම

* අඩු උෂ්ණත්වය
5. හිමලිම හානි ඇති වීම
6. $5^{\circ}C$ වඩා අඩු උෂ්ණත්වය ප්‍රභාසංශ්ලේෂණය

අ.පො.ස උසස් පෙළ සියලුම විෂයන්ට අදාල ප්‍රශ්න පත්‍ර/පිළිතුරු පත්‍ර/සටහන් ලබා ගැනීමට Past Papers Wiki වෙත පිවිසෙන්න
CamScanner

ආර්ද්‍රතාවයේ අහිතකර බලපෑම.

* වැඩි ආර්ද්‍රතාවය →

1. ශාක රෝග ආසාදන වැඩිවීම
2. පළිබෝධ ව්‍යාප්තිය වැඩි වීම.
3. සුළඟින් පරාගනය වන ශාකවල - පරාග ගමනට බාධා ඇතිවීම
4. උත්ස්වේදනය අඩු වී ජල හා පෝෂක අවශෝෂණයට බාධා ඇතිවීම

* අඩු ආර්ද්‍රතාවය →

5. ශාක වල උත්ස්වේදනය වැඩි වී ශාක මැලවීමට ලක් වීම

සුළඟේ අහිතකර බලපෑම

1. අධික සුළං උත්ස්වේදන වේගය වැඩි කරයි
2. යාන්ත්‍රික හානි ඇති වීම
3. ප්‍රභාසංශ්ලේෂක කොටස් වලට හානි වීම
4. පළිබෝධ , රෝග ව්‍යාප්තිය.
5. පත්‍ර මල් හා ඵල හැලීයාම

ආලෝකයේ අහිතකර බලපෑම

1. අඩු ආලෝක තීව්‍රතාව ශාකයේ ශාකවල ප්‍රභාසංශ්ලේෂණ අඩු කර අස්වනු අඩු කරයි
2. අඩු ආලෝක තීව්‍රතාව C4 ශාක වල වර්ධක , සංශ්ලේෂණ අඩු කරයි
   උදා - [illegible]
3. වැඩි ආලෝක තීව්‍රතාව උත්ස්වේදනය වේග වත් වේ.
4. ~~[illegible]~~ ආලෝකය ලැබෙන කාලය නියමිත ප්‍රමාණයට නොලැබීම නිසා ප්‍රකාශවර්තිතාව පෙන්වන ශාක වලට පුෂ්පීකරණ බාධා ඇතිවේ

හැඳින්වීම — ලකුණු 10.

සාධක 5 × ලකුණු 8 → 40.

(අහිතකර බලපෑම් 2 × ලකුණු 4)

III ජාන සම්පත් හායනයට හේතුවන මිනිස් ක්‍රියාකාරකම් විස්තර කරන්න.

හැඳින්වීම →

මිනිස් ක්‍රියාකාරකම් හෝ ස්වභාවික සංසිද්ධීන් වල බලපෑම් නිසා යම් ප්‍රදේශයක පවතින ආංශික විවිධත්වයක් සහිත ජාන තර්ජනයකට ලක්වීම ජාන සම්පත් හායනය ලෙස හැඳින්වීම

මිනිස් ක්‍රියාකාරකම් →

1. වනාන්තර එළි කිරීම.
2. ජාන බැංකු ලේලය - නිදහම
3. කළමනාකරණයකින් තොරව ස්වාභාවික සම්පත් අධි පරිභෝජනය
4. අධික ලෙස කෘෂි රසායන භාවිතය.
5. පරිසරයට බලපෑම් ඇති කර කර්මාන්ත ශාලා, විදුලිබලාගාර වැනි සංවර්ධන ව්‍යාපෘති ඇති කිරීම
6. ~~කිසි විශේෂ ලෙස~~ වෙනත් රටවල සිට මෙරටට ශාක, සතුන් පරිසර පද්ධතියට හඳුන්වා දීම නිසා ආගන්තුක ආක්‍රමණශීලී ශාක හා සතුන් බෝවීම වැඩි වීම
7. ගවයන් වැනි සතුන් අධික ලෙස තෘණ උලා කෑම.
8. වගුරු බිම් ගොඩ කිරීම.
9. අධික ලෙස මත්ස්‍ය ආර්ථිකකරණ කලාපීය සහ පරිසර දූෂණය.

හැඳින්වීම 10

කරුණු 5 × ලකුණු 8 → 40

(කරුණු 3 × විස්තර කිරීම 5)

අ.පො.ස උසස් පෙළ සියලුම විෂයන්ට අදාල ප්‍රශ්න පත්‍ර/පිළිතුරු පත්‍ර/සටහන් ලබා ගැනීමට Past Papers Wiki වෙත පිවිසෙන්න
CamScanner

! පුතුගේ සම කිරිවරෙහි ඉරු, තම නැමතුන්ට ශරීරය හෙදන ක්‍රියා වසකර කරන්න.

හැකියාව.

තම හැකියාවෙන් ඔහුගේ අවස්ථාවේ සම වසරක් දිගටම වයස අවු සෙම සාතුන් වලු නැවතුන් වේ.

හෙද ක්‍රියා

~~පුතුගේ~~ සහ

1. ඔහුගේ අවස්ථාවේ සමහර අවශ්‍යතා. ඉටුක් කරීම.
2. නාමය විසිතුරු කරීම - විරුර, වෙන් වයලට් රෙදි කවසක් වින දැමීම.
3. වෙනම් නාල විසිතුරු විවාතුහරින කතරකන් කිහා එක්සරේ අයාවක් විශේෂඥයකුගේ ආලෝචන
4. උපන් තර කිරා පාමතක් කරීම, හා වෙනත් ප්‍රසාමාතාවක කරීමෙන්තාය
5. ඔහුදී නැය 1/2 අතුලත මුලදි කිරි ලබා දීම. හා පැය දින 3 ක් දක්වා නාමයට ලබාදීම
6. පලමු මාසය තුල දේශ බර්ග 10% ක් බව කිරි ලබා දීම.
7. පැය 2 ක් පමණ වන විට 100 - 200g. නමන්හ අප ආහාර සහ සාර්ථ ආහාර හැඩාන ආරම්භ කරීම
8. දවස පුරාම විශේෂයක් තොරව විසිතුරු පලම ලබා දීම
9. මුලු මාසය තුල තනි කුඩ පාශ පවුව. සාමාන කුඩ වලම යොමු කිරීමෙ උත්තුසුගෙ. හිතාස සාමාපීම.
10. සාතුන් හතුහා ගාස්මම කාන් ලෑතනු කරීම වැනි ක්‍රමවේදයාක් කාවක කරීම

11 නිවසක් පන්නු හාරනය වෑංජලිවලින් නවතා ගැනීම සහ පත්නාත් කරනය සිදු කිරීම

12. උපත් කර දෙඟතකයන් ඉ හා කිරි වල කිරි ලබා දීම නැවතීම / කිරි වැරීම හා ඒ වන විට 7 kg පමණ බර හා සාන්ද්‍ර ආහාර සැපයීම.

හැඳින්වීම — 10.

කරුණු 8 X ලකුණු 5 → 40.

~~XI වැංජිලි ක්‍රියාවලිය අනුව පලිබෝධ වලට කිරීම ස්වභාව ආශ්‍රිත පත්කර කිරීම.~~

II ජෛව පොහොර යනු
වගා ක්ෂේත්‍රවල පසට යෙදූ විට බෝගවලට අවශ්‍ය ශාක පෝෂක ලබා දීමේ හැකියාව වර්ධනය කළ හැකි ක්ෂුද්‍රජීවීන් අඩංගු ජීවී ද්‍රව්‍යයකි.

වැදගත්කම

1. ලාභදායී වීම
ii බෝග වගාව සඳහා යොදන වියදම අඩු වීම
iii. නයිට්‍රජන් තිර කිරීම ~~මෙගුමෙන්~~ මගින් පසට N ලබා දීම
iv. බෝග අස්වැන්න 4 – 5% කින් ඉහළ නැංවීම
v. පසේ ගුණාංග වැඩි දියුණු වීම
vi. පසේ සාරවත් බව තිරසාර වීම
vii. පසේ P ද්‍රාව්‍යතාව වැඩි කිරීම ශාකයට ලබා ගත හැකි තත්ත්වයට පත් කිරීම
viii. ශාක වර්ධන උත්තේජක ද්‍රව්‍ය නිපදවීමෙන් ශාක වර්ධනය උත්තේජනය වීම
ix. රසායනික පොහොර භාවිතය අවම වීම
x. ජෛව පොහොර වල ඇති බැක්ටීරියා පසේ

අ.පො.ස උසස් පෙළ සියලුම විෂයන්ට අදාල ප්‍රශ්න පත්‍ර/පිළිතුරු පත්‍ර/සටහන් ලබා ගැනීමට Past Papers Wiki වෙත පිවිසෙන්න
CamScanner

ස්වාභාවික පෝෂක චක්‍ර ක්‍රියාකාරීත්වය ප්‍රවර්ධනය කර පසට කාබනික ද්‍රව්‍ය ලබා දීම

xi නිරෝගී ශාක ලැබීම

xii පාංශු සෞඛ්‍යය වැඩි දියුණු කිරීම

හැඳින්වීම - ලකුණු - 08

කරුණු 6 ලකුණු 7 = 42

(කරුණු කෙටියෙන් විස්තර කළ යුතුය) 50

III ආහාර නරක් වීම කෙරෙහි බලපාන "භෞතික සාධක" ~~විස්තර කරන්න~~ ආහාර නරක් වීම ට බලපාන ආකාරය විස්තර කරන්න

හැඳින්වීම -

~~ආහාර~~ යම් ආහාරයක් පරිභෝජනයට ගත නොහැකි ආකාරයට අනුචිත තත්වයට පත් වීම හෝ එහි ප්‍රත්‍යක්ෂ ගුණ නැති වී, ආහාර පරිභෝජනයට හානිකර වන හා නැති වීමට පත් වීම ආහාර නරක් වීමයි.

1. තෙතමනය

- ආහාරයේ ජල සක්‍රියතාවය වැඩි වන විට නරක් වීමට ඇති හැකියාව වැඩිය.
- ආහාරයේ නිදහස් ජලය ක්ෂුද්‍ර ජීවී ක්‍රියාකාරීත්වයට හා රසායනික ක්‍රියා සඳහා මාධ්‍යය සපයයි

2. උෂ්ණත්වය

- උෂ්ණත්වය වැඩි වන විට ආහාර තුළ රසායනික ප්‍රතික්‍රියා වේගවත් වී එන්සයිම ක්‍රියාකාරීත්වය හේතු වේ, විටමින් විනාශ වීම, ප්‍රෝටීන අස්වාභාවිකරණය, මේදවල ඔක්සිකරණය වීම සිදුවේ

- අඩු උෂ්ණත්වය මගින් ක්ෂුද්‍ර ජීවී ක්‍රියා

වෙනවත් වේ

3. යාන්ත්‍රික හානි
- තැලීම්, පොඩිවීම, සිරීම වැනි යාන්ත්‍රික හානි නිසා ඵල වල ක්ෂුද්‍රජීවී ක්‍රියාකාරීත්වය වැඩි වී ආහාර නරක් වේ
- කෘමීන්, මීයන් වැනි සත්ත්වයන් නිසා ද හේතු වේ

4. කාලය.
- නෙලු පසු ද ජීව ක්‍රියාවලි පවතින හෙයින් කාලය ගතවන විට පරිවෘත්තීය ක්‍රියා නිසා ස්වභාවිකව වියවී ආහාර පරිභෝජනයට නොහැකි තත්ත්වයට පත් වේ

(හැඳින්වීම - 10
කරුණු 4 × 10 → 40
(කරුණු 4 විස්තර 6))

(9) I පසක පවතින ~~ආ~~ භාෂ්මික අයනයන්ට සාපේක්ෂව ආම්ලික අයන සුලභ වීම ආම්ලිකතාවයයි.

පසක් ආම්ලික වීමට හේතු

i. අධික වර්ෂාපතනය
ii. කාබනික ද්‍රව්‍ය අඩු උෂ්ණත්වය යටතේ සෙමෙන් වියෝජනය වීම
iii. දීර්ඝ කාලීනව අඛණ්ඩව බෝග වගා කිරීම
iv. $(NH_4)_2SO_4$ වැනි ආම්ලික පොහොර දිගින් දිගටම යෙදීම.
v. අම්ල වැසි ඇතිවීම
vi. පසට අම්ලතාව එකතු වන Al හා Fe අයන මගින්

අ.පො.ස උසස් පෙළ සියලුම විෂයන්ට අදාල ප්‍රශ්න පත්‍ර/පිළිතුරු පත්‍ර/සටහන් ලබා ගැනීමට Past Papers Wiki වෙත පිවිසෙන්න
CamScanner

-25.

කෘෂිකාර්මික ගැටලු

i. රෝග වර්ධනය දුර්වලු වී අස්වැන්න අඩු වීම

ii. මූල පද්ධතියට විෂ සහිත තත්ත්ව ඇති වීම

iii. Al^{+3}, Fe^{2+}, Fe^{3+}, Mn^{2+} අධිකව අවශෝෂණය කර ගැනීම නිසා විෂ වීම

iv. Ca, Mg, K වැනි භාෂ්මික අයන ඌන වීම

v. PO_4^{3-} අයන Al^{+3} එකතු වී $AlPO_4$ අවක්ෂේපය සෑදීම නිසා ශාකයට ලබා ගත හැකි P ප්‍රමාණය අඩු වීම

vi. නිතර බැක්ටීරියා හා ඇක්ටිනෝමයිසිට් ක්‍රියාකාරීත්වය pH 5.3ට වඩා අඩු වන විට අඩු වී නාබනීකරණය හා නයිට්‍රිකරණය අඩපණ වීම

vii. ව්‍යාධිජනක දිලීර වර්ධනය වේගවත් වීම

උදා:- Plasmodiphora brassica

හැඳින්වීම – ලකුණු 10

ඇතිවන ආකාර 4 කට ලකුණු 5 ~ 20

ගැටලු 4 කට ලකුණු 5 ~ 20

II ඉදීමේ ක්‍රියාවලිය අනුව පලතුරු වර්ග කිරීම, නිදසුන් ඇසුරින් පැහැදිලි කරන්න. III

හැඳින්වීම -

පලතුරු ඉදීම යනු පලතුරු පරිණතභාවය සිරිමට අනුකූල ලෙස ක්‍රියාත්මක, රසය, ගන්ධාත්මය, වර්ණය, ස්වභාවය සහ අනෙකුත් ව්‍යුහාත්මක ගුණාංග වෙනස් කරන රසායනික ක්‍රියාවලියකි.

i -

ii .

පලතුරු ඉදීමේ ක්‍රියාවලිය අනුව වර්ග දෙකකි. iii -

1. ශ්වසන උපරිම පලතුරු iv
2. ශ්වසන උපරිම නොවන පලතුරු -v

ලක්ෂණ

* ඉදීමේදී හා වයසට යාමේදී ශ්වසන වේගයෙහි උපරිමය පෙන්වන පලතුරු වේ
* කැඩූ පසු ඉදීම සිදුවේ
* එතිලීන් වලට. කෘත්‍රිමව සැපයීමෙන් පලතුරෙහි එතිලීන් නිෂ්පාදනය වැඩිවේ - වේගයෙන් ඉදෙයි
* උදා -: ඇපල්, පෙයාස්, අඹ, කෙසෙල් ...
* පිෂ්ට සහිත පලතුරු වේ

ලක්ෂණ

* ඉදීමේදී හා වයසට යාමේදී ශ්වසන වේගයෙහි උපරිමයක් නොපෙන්වන පලතුරු වේ.
* කැඩූ පසු ඉදීම සිදු නොවේ. මේරීමෙන් පසු අස්වනු නෙළීම සිදු කරයි.
* එතිලීන් මාත්‍රාව අඩුය. වෙනසක් නොවේ
* එතිලීන් සැපයීමෙන් පලතුරු තුළ එතිලීන් නිෂ්පාදනය වැඩි කළ නොහැක
උදා -: අන්නාසි, ස්ට්‍රෝබෙරි ...
* පිෂ්ට සංචිත නොමැති පලතුරු

(10)

හැඳින්වීම → 10.
ලක්ෂණ 2×5 → 10.
උදාහරණ 2×5 → 10

අ.පො.ස උසස් පෙළ සියලුම විෂයන්ට අදාල ප්‍රශ්න පත්‍ර/පිළිතුරු පත්‍ර/සටහන් ලබා ගැනීමට Past Papers Wiki වෙත පිවිසෙන්න CamScanner

III. මිනිසාට හෝ මිනිසා විසින් ඇති කරනු ලබන සතුන්ට වගා කරනු ලබන බෝගයකට, ගබඩා කරන ලද නිෂ්පාදන වලට හෝ මිනිසා විසින් පරිහරණය කරනු ලබන යම් ද්‍රව්‍යකට ආර්ථික වශයෙන් හානි සිදු කරන ඕනෑම ජීවියෙකු හෝ ජීවී කාණ්ඩයක් පළිබෝධ වේ.

i. ගොවිපළ තුළ ජෛව විවිධත්වය අඩු වීම නිසා ස්වාභාවික සතුරන් හිඟ වීම

ii. වගා බිම් වල තනි බෝගයක් හෝ තෝරා ගත් බෝග වර්ග කිහිපයක් පමණක් වගා කිරීම

iii. නැවත නැවත එකම බෝගය වගා කිරීම

iv. පාරම්පරික බෝග වගාවෙන් ඈත් වීම

v. නිර්මිත පරිසරයක වගා කටයුතු සඳහා ස්වාභාවික ශාක ගහනය ඉවත් කිරීම නිසා පරිසරයේ ස්වාභාවික සමතුලිතතාව ඇති කරන ජීවින්ට වාසස්ථාන අහිමි වීම

හැඳින්වීම — 10
කරුණු 5 සඳහන් කිරීම — ලකුණු 3×5
කරුණු 5 විස්තර කිරීම — ලකුණු 5×5

(10) I අලෙවිකරණය යනු මිනිස් උවමනා හා අවශ්‍යතා තෘප්තිමත් කිරීම තුළින් ව්‍යාපාරික අරමුණු ඉටුකර ගන්නා වූ සමෝධානික ක්‍රියාවලියකි.

කාර්යක්ෂමතාව වැඩි කිරීමට,

i. නවීන තොග පවත්වාගෙන යාම
ii. සුදුසු ප්‍රවාහන ක්‍රම භාවිතය
iii. සුදුසු ඇසුරුම් ද්‍රව්‍ය භාවිතය
iv. පෙර අස්වනු ක්‍රියාවලිය
v. නිවැරදි පසු අස්වනු තාක්ෂණික ක්‍රම භාවිතය
vi. ප්‍රචාරණය කිරීම
vii. විකුණුම් ප්‍රවර්ධනය
viii. වෙළෙඳ හැඳුනුම් වීම

හැඳින්වීම — 10
කරුණු 5 විස්තර කිරීම 5×8

(II) ජීවී පරාගකාරකයින් යනු පරාගනය සඳහා දායක වන ~~ජීවීන්ය~~ කෘමීන්ය.

උදා:- මී මැස්සන්, සමනලයන්, බඹරුන්

පරාගකාරක හීන වීමට හේතු,

i. පරිසර දූෂණය
ii. කෘමිනාශක / පළිබෝධනාශක භාවිතය
iii. ජීවීන්ගේ ස්වාභාවික වාසස්ථාන විනාශ වීම
iv. නාගරීකරණය
v. කෘමි සතුන්ට ආහාර හීන වීම

වලක්වාගන්නා ආකාරය ...

i. පරාගකාරක ජීවීන්ට වාසස්ථාන ඇති කිරීම
ii. පරිසර හිතකාමී පළිබෝධ පාලන ක්‍රම භාවිත
iii. පරිසර හිතකාමී රසායනික ක්‍රම හා වගා රෝග භාවි

හැඳින්වීම - ලකුණු 08
හීන වීමට හේතු 04 ලකුණු 6
වලක්වා ගන්නා ආකාර ~~..~~ 03, ලකුණු 6

III වනාන්තරයක ඇති සමතුලිතතාව හැකි තරම් ආරක්ෂා කර ගත හැකි වන පරිදි ආර්ථිකව හා කෘෂිකාර්මිකව වනාන් ඵලදායී ලෙසත් තිරසාර ලෙසත් භූමිය පරිහරණය කරන්නා වූ විවිධ ජෛව සංකලනයෙන් යුතු වනා කළමනාකරණ පද්ධතියකි.

කාරනයන්

i ස්වාභාවික චක්‍රවල තුලනය පවත්වා ගැනීම
ii. පාංශු ඛාදනය අවම කිරීම
iii. වායුගෝලීය සමතුලිතතාව ආරක්ෂා කිරීම
iv. සතුන්ට ආහාර හා වාසස්ථාන ලැබීම
v. ජෛව සමතුලිතතාව පවත්වා ගැනීම

CamScanner
අ.පො.ස උසස් පෙළ සියලුම විෂයන්ට අදාල ප්‍රශ්න පත්‍ර/පිළිතුරු පත්‍ර/සටහන් ලබා ගැනීමට Past Papers Wiki වෙත පිවිසෙන්න

vi. ආගත ඵලය භාරකාරත්වය වීම
vii. පසට කාබනික ද්‍රව්‍ය එකතු වන හෙයින් පස සරු වීම
viii. පාංශු ජෛවීන ~~සක~~ සක්‍රීයකරණය වීම
ix. පරිසර උෂ්ණත්ව යාමනය
x. පාංශු ජීවීන්ට හිතකර තත්ත්ව ලැබීම
xi. දැව හා ඉන්ධන ලබා ගත හැකි වීම
xii. වායව පරිසරය කාර්යක්ෂම ව පරිහරණය වීම.

හැඳින්වීම – 8
කරුණු 7 විස්තර කිරීම 6 – 42

වාරෙටම ඕන කරන පොත් එකපාර
ඕඩර් කරලා දැන් ගෙදරටම ගෙන්වා ගන්න

LOL
Book Store

25% OFF ALL BOOKS

Including Exercise Books, CR Books, and B5 Books

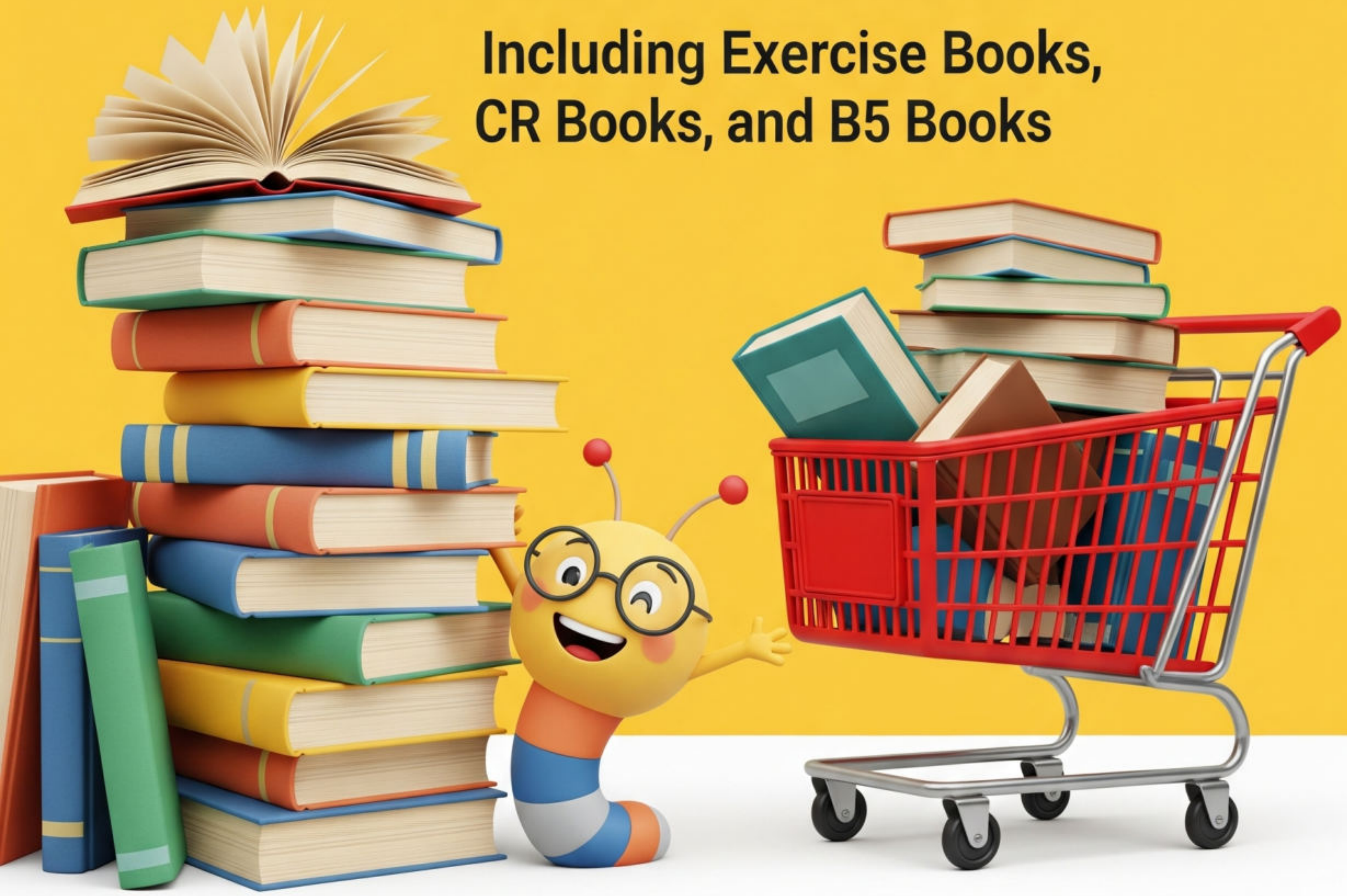

ඕනෙම අභ්‍යාස පොතකට 25%ක විශේෂ වට්ටමක්

ORDER BOOKS FROM LOL BOOKS STORE

0372060110 WWW.LOL.LK

071 777 4440 (WhatsApp)

Cash On Delivery Available

ORDER A/L TERM TEST PAPERS, SHORT NOTES, WORKBOOKS & REVISION BOOKS

SINHALA, ENGLISH & TAMIL MEDIUM

LOL BOOK STORE

CASH ON DELIVERY AND KOKO PAYMENT AVAILABLE

0717774440 (WHATSAPP)

WWW.LOL.LK