සියලු ම හිමිකම් ඇවිරිණි.

රහස්‍ය ලේඛනයකි.

ශ්‍රී ලංකා විභාග දෙපාර්තමේන්තුව
අ.පොස. (උ.පෙළ) විභාගය - 2025

52 - නර්තනය

ලකුණු දීමේ පටිපාටිය



මෙය උත්තරපත්‍ර පරීක්ෂකවරුන්ගේ ප්‍රයෝජනය සඳහා සකස් කෙරිණි.
ප්‍රධාන පරීක්ෂක රැස්වීමේ දී ඉදිරිපත්වන අදහස් අනුව මෙහි වෙනස්කම් කරනු ලැබේ.

අවසන් සංශෝධන ඇතුළත් කළ යුතුව ඇත.

Past Papers Wiki

අධ්‍යයන පොදු සහතික පත්‍ර (උසස් පෙළ) විභාගය - 2025

52 - නර්තනය

ප්‍රශ්නපත්‍ර ව්‍යුහය හා ලකුණු බෙදීයාම

I පත්‍රය

කාලය පැය 02 යි.

වරණ 5 න් යුත් බහුවරණ ප්‍රශ්න 25 ක් හා කෙටි පිළිතුරු සැපයීමේ ප්‍රශ්න 25 කි.

ප්‍රශ්න සියල්ලටම පිළිතුරු සැපයිය යුතුය.

එක් ප්‍රශ්නයකට ලකුණු 02 බැගින් ප්‍රශ්න 50 කි. (50 x 02) මුළු ලකුණු 100 කි.

II පත්‍රය

කාලය පැය 03 යි.

මෙම ප්‍රශ්න පත්‍රය I, II හා III වශයෙන් කොටස් තුනකින් සමන්විත වේ.

I කොටස - රචනා වර්ගයේ ප්‍රශ්න 02 කි.
1 හා 2 ප්‍රශ්න අනිවාර්ය වේ.

II කොටස - රචනා වර්ගයේ ප්‍රශ්න 03 කි
අවම වශයෙන් එක් ප්‍රශ්නයකටවත් පිළිතුරු සැපයිය යුතුය.

III කොටස - රචනා වර්ගයේ ප්‍රශ්න 03 කි.
අවම වශයෙන් එක් ප්‍රශ්නයකටවත් පිළිතුරු සැපයිය යුතුය.

II හා III කොටස්වලින් අවම වශයෙන් එක් ප්‍රශ්නය බැගින් හෝ තෝරාගෙන, අනිවාර්යය ප්‍රශ්න 02 ද ඇතුළුව ප්‍රශ්න 05 කට පිළිතුරු සැපයිය යුතුය.
සෑම ප්‍රශ්නයකම (i) කොටසට ලකුණු 06 ක්ද (ii) කොටසට ලකුණු 06 ක්ද (iii) කොටසට ලකුණු 08 ක්ද, වශයෙන් මුළු ලකුණු 20 බැගින් හිමිවේ.

පළමු පත්‍රය (ප්‍රශ්න 50 x 2)	ලකුණු 100
දෙවන පත්‍රය (ප්‍රශ්න 20 x 5)	ලකුණු 100
I හා II පත්‍ර සඳහා 100 + 100	ලකුණු 200
	2
අවසාන ලකුණු	ලකුණු 100

CamScanner

සියලු ම හිමිකම් ඇවිරිණි/முழுப் பதிப்புரிமையுடையது/All Rights Reserved]

ශ්‍රී ලංකා විභාග දෙපාර්තමේන්තුව இலங்கைப் பரீட்சைத் திணைக்களம் Department of Examinations, Sri Lanka

අධ්‍යයන පොදු සහතික පත්‍ර (උසස් පෙළ) විභාගය, 2025
கல்விப் பொதுத் தராதரப் பத்திர (உயர் தர)ப் பரீட்சை, 2025
General Certificate of Education (Adv. Level) Examination, 2025

නර්තනය - (දේශීය)	I	
நடனம் - (தேசிய)	I	
Dancing - (Indigenous)	I	

52 S I

පැය දෙකයි
இரண்டு மணித்தியாலம்
Two hours

විභාග අංකය : .....

පරීක්ෂකවරුන්ගේ ප්‍රයෝජනය සඳහා

පිටු අංකය	ප්‍රශ්න අංක	ලකුණු
01	01 - 03	
02	04 - 13	
03	14 - 20	
04	21 - 32	
05	33 - 42	
06	43 - 50	
එකතුව		

	අත්සන	සංකේත අංකය
1 වන පරීක්ෂක		
2 වන පරීක්ෂක		
අති. ප්‍රධාන පරීක්ෂක		
ගණිත පරීක්ෂක		
ප්‍රධාන පරීක්ෂක		

උපදෙස්:

* ප්‍රශ්න **සියල්ලට ම** පිළිතුරු **මෙම ප්‍රශ්න පත්‍රයේ ම** සැපයිය යුතු ය.

● අංක **01** සිට **25** තෙක් ප්‍රශ්නවලට පිළිතුරු සැපයීමේ දී නිවැරදි හෝ වඩාත් ම ගැළපෙන හෝ පිළිතුර තෝරා, ඊට අදාළ **අංකය** ප්‍රශ්නය ඉදිරියෙහි ඇති **වරහන තුළ ලියන්න.**

1. පා සරඹ / මණ්ඩි පද සහ ගොඩ සරඹ / ඉලංගම් සරඹ / දොඹින පද නර්තනය කිරීමේ මූලික පරමාර්ථය වන්නේ,
(1) නර්තන ශක්‍යතා ප්‍රදර්ශනය කිරීම ය.
(2) ශරීර සම්බරතාව ගොඩනැඟීම ය.
(3) නිවැරදි ආංගහාර සකස් කිරීම ය.
(4) විවිධ පැනීම්, කැරකීම් පුහුණු කිරීම ය.
(5) නර්තනයේ වේගය පුහුණු කිරීම ය. (.....3)

2. කොතල පදය / කෙණ්ඩි පාළිය නර්තනය කිරීමෙන්,
(1) ගායන රහිත නර්තන කුසලතා වර්ධනය කරගත හැකි ය.
(2) පූජා භාණ්ඩ නිවැරදිව හසුරුවමින් නර්තන ශක්‍යතාව වර්ධනය කරගත හැකි ය.
(3) නිවැරදි අංගහාර අනුගමනය කරමින් තාලාත්මක නර්තන හැකියාව වර්ධනය කරගත හැකි ය.
(4) රංග කරළියෙහි පැන් ඉසිමින් එහි පවිත්‍රතාව වර්ධනය කරගත හැකි ය.
(5) ඒකල නර්තන හැකියාව සහ දේව ආශීර්වාදය ළඟා කරගත හැකි ය. (.....2)

3. තුන් සුළු දෙමහ පස්නිත විභාග කොට දැක්වීය හැකි වරණය තෝරන්න.
(1) $\hat{1}2 / \hat{1}2 / \hat{1}2 / \acute{1}23 / \acute{1}23$
(2) $\acute{1}2 / \acute{1}2 / \acute{1}2 / \hat{1}234 / \hat{1}234$
(3) $\hat{1}23 / \hat{1}23 / \hat{1}23 / \acute{1}234 / \acute{1}234$
(4) $\acute{1}23 / \acute{1}23 / \acute{1}23 / \hat{1}234 / \hat{1}234$
(5) $\hat{1}2 / \hat{1}2 / \hat{1}2 / \acute{1}234 / \acute{1}234$ (.....5)

CamScanner

4. දැන පෙරළා බෙර වාදනය හුරුවීමට වඩාත් යෝග්‍ය වාද්‍ය භාණ්ඩ වන්නේ,
(1) ගැටබෙරය සහ දවුල ය.
(2) ගැටබෙරය සහ උඩැක්කිය ය.
(3) පහතරට බෙරය සහ තම්මැට්ටම ය.
(4) පහතරට බෙරය සහ උඩැක්කිය ය.
(5) ගැටබෙරය සහ පහතරට බෙරය ය. (.....5.....)

5. උඩැක්කි හා පන්තේරු කවි අයත් වන්නේ කුමන ගණයට ද?
(1) ගැමි ගී (2) සේ ගී
(3) මෙහෙ ගී (4) ශාන්තිකර්ම ගී
(5) කෙළි ගී (.....2.....)

6. "සිරස බඳින ජටා සතර පළමු ලේ විලේ ....." මෙම කවිය කිනම් චරිතයකට අයත් ද?
(1) රිරී යකා (2) තොට යකා
(3) කළු යකා (4) අභිමානා
(5) මහසෝනා (.....1.....)

7. චලනයෙහි ස්වභාවය වෙනස්වීම කෙරෙහි බලපාන ප්‍රධාන සාධක වන්නේ,
(1) ශක්තිය, චලනය, දුර සහ වේගයයි.
(2) ශක්තිය, කාලය, දුර සහ වේගයයි.
(3) ශක්තිය, සම්බරතාව, කාලය සහ දුරයි.
(4) සම්බන්ධතා, කාලය, චලනය සහ බරයි.
(5) අවකාශය, සම්බන්ධතා, වේගය සහ දිශායි. (.....2.....)

8. විලියක් මංගල්‍යයේදී සිදු **නොවන** චාරිත්‍රයක් වන්නේ,
(1) ගරා වෙස් පෑමයි. (2) බලි බත් දීමයි.
(3) පරහඳ ගෑමයි. (4) ඇහැළ කණුව සිටුවීමයි.
(5) කප් සිටුවීමයි. (.....5.....)

9. සන්නි යකුම් යාගයේ ප්‍රධාන රංග මණ්ඩපය හඳුන්වන නාම ලෙස සැලකෙන්නේ,
(1) සන්නි යකුම් විදිය, ලිච්ඡවි විදිය සහ සංඛපාල විදියයි.
(2) සන්නි යකුම් විදිය, සංඛපාල විදිය සහ කපාල විදියයි.
(3) සන්නි යකුම් විදිය, තොරන් විදිය සහ කපාල විදියයි.
(4) තොරන් විදිය, ලිච්ඡවි විදිය සහ සංඛපාල විදියයි.
(5) තොරන් විදිය, සූනියම් විදිය සහ කඩවර විදියයි. (.....2.....)

10. "නෘත්‍ය ගීත වාදනය කෙරෙනි. සිනාසෙති. ඔවුහු බෝධිය පිරිවරා ගත්තාහු ....." ආදී වශයෙන් ශ්‍රී මහා බෝධීන් වහන්සේට පුද පූජා පැවැත්වූ ආකාරය සඳහන් වංශ කතාව කුමක් ද?
(1) චූලවංශය (2) ධාතුවංශය
(3) ථූපවංශය (4) දීපවංශය
(5) එළඅත්තනගලුවංශය (.....4.....)

11. ටුකඩා සහ පරන් නර්තනාංග වේදිකාවට නිර්මාණය කොට ප්‍රදර්ශනය කරන ලද්දේ,
(1) නවාබ් චණ්ඩි අලීෂා ය. (2) කාල්කා ප්‍රසාද් ය.
(3) අච්චන් මහරාජ් ය. (4) ජීනදාස වික්‍රමසිංහ ය.
(5) බිර්ජු මහරාජ් ය. (.....3.....)

12. හින්දුස්ථානි තාල පද්ධතියෙහි කෙහෙර්වා තාලයට අයත් මාත්‍රා ගණන
(1) 06 කි. (2) 08 කි.
(3) 10 කි. (4) 12 කි.
(5) 16 කි. (.....2.....)

13. නර්තනය පිළිබඳ තොරතුරු දැක්වෙන ගම්පොළ සහ කෝට්ටේ යුගයේ රචිත සංදේශ කාව්‍ය වන්නේ පිළිවෙළින්
(1) මයුර සහ පරෙවි ය. (2) පරෙවි සහ සැලළිහිණිය ය.
(3) හිසර සහ මයුර ය. (4) මයුර සහ හිසර ය.
(5) කෝකිල සහ සැවුල් ය. (.....1.....)

CamScanner

14. "වීරමුණ්ඩ දෙවි වඩින්න - සියලු දෝෂ දුර හරින්ඩ ....." මෙම කවිය අයත් වන්නේ,


(1) කොහොඹා හෑල්ලට ය. (2) මඩුපුරයට ය.
(3) අස්නෙට ය. (4) කෝල්මුරවලට ය.
(5) මල් පදයට ය.

(.....) **2**

15. පහත A සහ B රූප දක්නට ලැබෙන්නේ පිළිවෙළින්,



A



B

(1) බෙන්තොට ගලපාත විහාරයේ සහ ඇම්බැක්ක දේවාලයේ ය.
(2) සැටදාගෙහි සහ ලෝවාමහපාය කණු හිස්වල ය.
(3) ලෝවාමහපාය කණු හිස්වල සහ බෙන්තොට ගලපාත විහාරයේ ය.
(4) මැදිරිගිරිය වටදාගෙයහි සහ බෙන්තොට ගලපාත විහාරයේ ය.
(5) ගඩලාදෙණිය විහාරයේ සහ ඇම්බැක්ක දේවාලයේ ය.

(.....) **5**

16. හස්තං දෘෂ්ටි මුඛං පාදං - තාලාංචේ ගමනං තථා .....
යනුවෙන් නර්තනය පිළිබඳ විග්‍රහ කර ඇත්තේ කවුරුන් විසින් ද?

(1) නන්දිකේශ්වර (2) භරතමුනි
(3) අභිනවගුප්ත (4) ආනන්දවර්ධන
(5) ධනංජය

(.....) **2**

17. තාල ශාස්ත්‍රය පිළිබඳ 1994 වර්ෂයේදී ප්‍රකාශිත කෘතිය සහ එහි කතුවරයා කවුරුන් ද?

(1) හෙළ ගී මග – ඩබ්ලිව්. බී. මකුලොලුව්
(2) සිංහල නර්තන කලාව – මුදියන්සේ දිසානායක
(3) සිංහල තිත් තාල ක්‍රමය – සරත් විජේවර්ධන
(4) නෘත්‍ය රත්නාකරය – ජේ. ඊ. සේදරමන්
(5) තාල ඥානය – වින්සන්ට් සෝමපාල

(.....) **3**

18. කෝලම් මඩුවේ කරළියට එන නොන්බි අක්කාගේ දරු දෙදෙනා කවු ද?

(1) චුක්කිනියා සහ සොන්නානා (2) හෙංචප්පු සහ දුක්කිනියා
(3) චුක්කිනියා සහ පරයා (4) චුක්කිනියා සහ ඩුංගුරුවා
(5) ඩුංගුරුවා සහ පරයා

(.....) **4**

19. "ඒ බුදු රැස් කද තුන් ලොව විහිදූ - ඒ බුදු මඟුලට ආ සැම දෙවිඳූ ..." මෙම කවිය

(1) උඩැක්කි කවියකි. (2) පන්තේරු කවියකි.
(3) ලී කෙළි කවියකි. (4) පෙළුම් කවියකි.
(5) වරම් කවියකි.

(.....) **1**

20. රුක්මණී දේවි අරුන්ඩෙල් විසින් නර්තනය ඉගැන්වීම සඳහා ආරම්භ කරන ලද ආයතනය කුමක් ද?

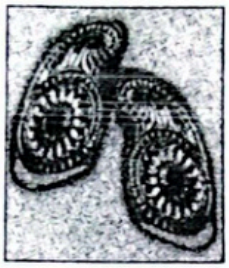
(1) නෘත්‍යග්‍රාම් (2) කලා ක්ෂේත්‍ර
(3) විශ්ව භාරති (4) කේරළ කලා මණ්ඩලම්
(5) භාණ්ඩන්ඩේ

(.....) **2**


PAST PAPERS WIKI

CamScanner

21. පහත A සහ B රූපවලින් දැක්වෙන රංගාභරණ පිළිවෙළින් සඳහන් වරණය තෝරන්න.



A



B

(1) හස්ත කඩය සහ ගිනි සිළුව
(2) උරබාහු සහ ජටාව
(3) කන්පෙත්ත සහ ශීර්ෂාභරණය
(4) තෝඩුපත් සහ ශිබාබන්ධනය
(5) තෝඩුපත් සහ පායිම්පත

(.....5.....)

22. නිත්තවෙල ගුණයා සහ ප්‍රේම කුමාර එපිටවෙල විසින් නර්තන නිර්මාණය කළ නවතම වත්නම් දිවිත්වය පිළිවෙළින්,
(1) ඇඟලුම් සහ ගුරුදේව ය.
(2) මරඟන සහ මහබෝ ය.
(3) ආයිත්නා සහ නලඟන ය.
(4) සමනළ සහ හංස ය.
(5) මහබෝ සහ හංස ය.

(.....4.....)

23. ආඬිගුරු නැටීම සහ මංගර උපන් තනා අන්තර්ගත සබරගමු නර්තන සම්ප්‍රදායයේ ශාන්තිකර්මය ලෙස සැලකෙන්නේ,
(1) කඩීනා බලියයි.
(2) උයන්ඟන පිදිල්ලයි.
(3) කිරි මඩුවයි.
(4) පහන් මඩුවයි.
(5) ගී මඩුවයි.

(.....3.....)

24. කථක් නර්තන සම්ප්‍රදායයේ භාවිත කළ පැරණි තාල වාද්‍ය භාණ්ඩය සහ ස්වර වාද්‍ය භාණ්ඩය කුමක් ද?
(1) තබ්ලාව සහ වයලීනය
(2) තබ්ලාව සහ හාර්මෝනියම්
(3) පඛාවාජ් සහ වයලීනය
(4) පඛාවාජ් සහ සාරංගිය
(5) මෘදංගය සහ සිතාරය

(.....4.....)

25. අංග, ප්‍රත්‍යාංග සහ උපාංග භාවිතයට ගනිමින් වාචික අභිනයෙන් තොරව කිසියම් කතාවක් හෝ අවස්ථාවක් නිරූපණය කෙරෙනුයේ,
(1) ශෛලිගත නාට්‍ය මගිනි.
(2) කාන්වික නාට්‍ය මගිනි.
(3) මුද්‍රා නාට්‍ය මගිනි.
(4) ලෝක ධර්මී නාට්‍ය මගිනි.
(5) නාට්‍ය ධර්මී නාට්‍ය මගිනි.

(.....3.....)

● අංක **26** සිට **35** තෙක් දී ඇති එක් එක් වාක්‍යයේ හිස්තැනට වඩාත් සුදුසු වචන/වචනය යොදන්න.

26. සබරගමු සම්ප්‍රදායේ ගොපලු කුරුම්බර සමඟ දොළොස් කුරුම්බර පුද ලබන්නේ **කිරි මඩුව** ශාන්තිකර්මයේදී ය.

27. මුදලි කෝලමේදී තල් අත්ත අල්ලන්නේ **හෙන්චා/ හෙන්චප්පු** නම් සේවකයා විසිනි.

28. අත් උදව්කරුවා හෙවත් අකෝරකරුවා, සබරගමු සම්ප්‍රදායේදී **නෙල්ලිකොත්තුවා** නමින් හැඳින්වේ.

29. "පහනරට සින්දු වත්නම් විමර්ශනය" කෘතිය රචනා කරන ලද්දේ **මහාචාර්ය ලයනල් බෙන්තරගේ** විසිනි.

30. සන්නියකුම ශාන්තිකර්මයේදී අවසානවරට සභාගත වන්නේ **කෝල සන්නිය/ මහා කෝල සන්නිය/ රාජමුඛ කෝල සන්නිය** සන්නියයි.

31. අධ්‍යාපන ප්‍රතිසංස්කරණ යටතේ සෞන්දර්ය විෂය අනිවාර්ය වූයේ **1972** වර්ෂයේදී ය.

32. දෙවොල් දෙවියන් ලක්දිවට පැමිණි නැවේ කුඹඟස සිහිවීම පිණිස දෙවොල් මඩුවේදී **කාලපන්දම් ගස** සිටුවනු ලබයි.

CamScanner


33. ටුමරි යනු ..... ශෘංගාර ..... රසය කිව්‍ර කරන නර්තනාංගයකි.

34. "ඒ වේදේහ රජුගේ විධානයෙන් අතක විතත විතතාතත ..." යන පාඨය සඳහන් වන්නේ .....
..... උම්මග්ග ජාතකය ..... නම් කෘතියේ ය.


35. රතු සහ නිල් වර්ණ එක්වීමෙන් ..... මැජෙන්ටා/ රතුවන් දම් ..... වර්ණය නිර්මාණය වේ.

● අංක **36** සිට **50** තෙක් ප්‍රශ්නවලට අදාළ පිළිතුරු **සිත් ඉර** මත ලියන්න.

36. **A** සහ **B** රූපවලින් දැක්වෙන ශාන්තිකර්ම සැරසිලි **දෙක** නම් කරන්න.



A



B

(i) A : ..... රටයකුම් විදිය - රිද්දිලාග මණ්ඩපය - නාමල්ලය, මල්මඤ්ඤ .....

(ii) B : ..... සන්නියකුම් විදිය - දානශාලා කෞතුක කොටස, සංඛනල්ල විදිය .....

37. රබීන්ද්‍රනාත් තාගෝර්තුමා ඇතුළු පිරිස විසින් ප්‍රථමවරට ශ්‍රී ලංකාවේ ඉදිරිපත් කරන ලද නෘත්‍ය නාටකය සහ එය ඉදිරිපත් කරන ලද වර්ෂය කුමක් ද?

(i) නෘත්‍ය නාටකය : ..... ශාප්මෝචන් .....

(ii) වර්ෂය : ..... 1934 .....

38. භරතමුනිගේ නාට්‍ය ශාස්ත්‍රයට අනුව 'විභාව' කොටස් දෙකකින් යුක්ත ය. ඒ මොනවා ද?

(i) ..... ආලම්භන විභාව .....

(ii) ..... උද්දීපන විභාව .....

39. භරත නාට්‍යයම් ශිල්පිනියකගේ ඉනෙහි සහ උරබාහුවල පලඳින ආභරණ නම් කරන්න.

(i) ඉන : ..... ඉන - ඔටටියානම් .....

(ii) උරබාහු : ..... උරාබාහු - වංගි/ වංකි .....

40. පිරියක් චරිතය වෙස් ගැන්වීමේදී භාවිත ප්‍රධාන වර්ණය සහ රංග භාණ්ඩය කුමක් ද?

(i) ප්‍රධාන වර්ණය : ..... රතු - රක්තවර්ණය .....

(ii) රංග භාණ්ඩය : ..... මුහුර/ පිරි මුහුර - යමෙ මුහුර් .....

41. ශරීරය දරදඬු වීම සහ දහඩිය දැමීම යන සාත්වික භාව හඳුන්වන නාම **දෙක** ලියන්න.

(i) ශරීරය දරදඬු වීම : ..... ස්තම්භ .....

(ii) දහඩිය දැමීම : ..... ස්වේද .....

42. "සිරිවස ගෙන අසු නැගෙමින් නොලෙසා..." මෙම කවි පදයෙහි ලඝු සහ ගුරු මාත්‍රා සංඛ්‍යාව ලියන්න.

(i) ලඝු : ..... 12 .....

(ii) ගුරු : ..... 02 .....

CamScanner

43. සෞන්දර්ය ගුරු විදුහල ස්ථාපිත කළ ස්ථානය සහ වර්ෂය කුමක් ද?

(i) ස්ථානය : ගිරාගම්

(ii) වර්ෂය : 1972

44. ටීකා සිපදයක ව්‍යුහය සැකසී ඇති ප්‍රධාන කොටස් **දෙක** ලියා දක්වන්න.

(i) ..... ගද්‍ය - ටීකාව

(ii) ..... පද්‍ය - මූල පාඨය

45. බෙර වාදනයේදී භාවිත අවනද්ධාක්ෂර වර්ග **දෙක** නම් කරන්න.

(i) ..... බීජාක්ෂර

(ii) ..... ගර්භාක්ෂර

46. නිදි කුමරිය බැලේ නිර්මාණය ප්‍රථමවරට රඟදක්වන ලද වර්ෂය සහ නගරය ලියන්න.

(i) වර්ෂය : 1890

(ii) නගරය : ශාන්ත පීටර්ස් බර්ග්/ සෙන්පීටර්ස් බර්ග්

47. ශිවරංග ඝන සිත්න බත යන මුද්‍රා නාට්‍ය නිර්මාණය කළ ශිල්පීන් දෙදෙනා කවුද?

(i) ශිවරංග : චිත්‍රසේන ඩයස්

(ii) සිත්න බත : ප්‍රේමකුමාර එපිටවෙල

48. මහ පරාක්‍රමබාහු සහ නිශ්ශංකමල්ල රජවරුන් නර්තනය උදෙසා ඉදිකළා යැයි සැලකෙන රංග මණ්ඩප **දෙක** නම් කරන්න.

(i) මහ පරාක්‍රමබාහු රජු : සරස්වතී මණ්ඩපය

(ii) නිශ්ශංකමල්ල රජු : නිශ්ශංකලතා මණ්ඩපය


● අංක 49 සහ 50 ප්‍රශ්නවලට පහත දැක්වෙන A, B, C, D රූප ඇසුරෙන් පිළිතුරු සපයන්න.



A



B



C



D

49. ඉහත **A** සහ **B** රූපවල දැක්වෙන තාල තැබීමට උපයෝගී කරගන්නා ඝණවාද්‍ය භාණ්ඩය සහ රංගාභරණය කුමක් ද?

(i) **A** : නට්ටුවාංගම්

(ii) **B** : ගුංගුරු/ ගෙජ්ජි

50. ඉහත **C** සහ **D** රූපවල දැක්වෙන රංගාභරණය සහ රංග භාණ්ඩය නම් කරන්න.

(i) **C** : රතු

(ii) **D** : අත්මිණිය

* * *

PAST PAPERS WIKI

CamScanner

43. සෞන්දර්ය ගුරු විදුහල ස්ථාපිත කළ ස්ථානය සහ වර්ෂය කුමක් ද?

(i) ස්ථානය : ගිරාගම

(ii) වර්ෂය : 1972

44. වීකා සීපදයක ව්‍යුහය සැකසී ඇති ප්‍රධාන කොටස් **දෙක** ලියා දක්වන්න.

(i) ගද්‍ය - වීකාව

(ii) පද්‍ය - සිව් පදය

45. බෙර වාදනයේදී භාවිත අවනද්ධාක්ෂර වර්ග **දෙක** නම් කරන්න.

(i) බීජාක්ෂර

(ii) ගර්භාක්ෂර

46. නිදි කුමරිය බැලේ නිර්මාණය ප්‍රථමවරට රඟදක්වන ලද වර්ෂය සහ නගරය ලියන්න.

(i) වර්ෂය : 1890

(ii) නගරය : ශාන්ත පීටර්ස් බර්ග්/ සෙන්පීටර්ස් බර්ග්

47. ශිවරංග ස්ථ නිත්න බත යන මුද්‍රා නාට්‍ය නිර්මාණය කළ ශිල්පීන් දෙදෙනා කවුද?

(i) ශිවරංග : චිත්‍රසේන ඩයස්

(ii) නිත්න බත : ප්‍රේමකුමාර එපිටවෙල

48. මහ පරාක්‍රමබාහු සහ නිශ්ශංකමල්ල රජවරුන් නර්තනය උදෙසා ඉදිකළා යැයි සැලකෙන රඟ මණ්ඩප **දෙක** නම් කරන්න.

(i) මහ පරාක්‍රමබාහු රජු : සරස්වති මණ්ඩපය

(ii) නිශ්ශංකමල්ල රජු : නිශ්ශංකලතා මණ්ඩපය


● අංක **49** සහ **50** ප්‍රශ්නවලට පහත දැක්වෙන **A, B, C, D** රූප ඇසුරෙන් පිළිතුරු සපයන්න.



A



B



C



D

49. ඉහත **A** සහ **B** රූපවල දැක්වෙන තාල තැබීමට උපයෝගී කරගන්නා සඟ්වාද්‍ය භාණ්ඩය සහ රංගාභරණය කුමක් ද?

(i) **A** : නට්ටුවාංගම්

(ii) **B** : ගුංගුරු/ ගෙජ්පි

50. ඉහත **C** සහ **D** රූපවල දැක්වෙන රංගාභරණය සහ රංග භාණ්ඩය නම් කරන්න.

(i) **C** : රතු

(ii) **D** : අත්මිණිය - ආගනය - වීජ්පුලිණිය - විදුරුමිණිය

* * *

CamScanner

සියලු ම හිමිකම් ඇවිරිණි/முழுப் பதிப்புரிமையுடையது/All Rights Reserved]

ශ්‍රී ලංකා විභාග දෙපාර්තමේන්තුව
இலங்கைப் பரீட்சைத் திணைக்களம்
Department of Examinations, Sri Lanka

අධ්‍යයන පොදු සහතික පත්‍ර (උසස් පෙළ) විභාගය, 2025
கல்விப் பொதுத் தராதரப் பத்திர (உயர் தர)ப் பரீட்சை, 2025
General Certificate of Education (Adv. Level) Examination, 2025

නර්තනය - (දේශීය) II
நடனம் - (தேசிய) II
Dancing - (Indigenous) II

52 S II

පැය තුනයි
மூன்று மணித்தியாலம்
Three hours

අමතර කියවීම් කාලය - මිනිත්තු 10 යි
மேலதிக வாசிப்பு நேரம் - 10 நிமிடங்கள்
Additional Reading Time - 10 minutes

අමතර කියවීම් කාලය ප්‍රශ්න පත්‍රය කියවා ප්‍රශ්න තෝරා ගැනීමටත් පිළිතුරු ලිවීමේදී ප්‍රමුඛත්වය දෙන ප්‍රශ්න සංවිධානය කර ගැනීමටත් යොදාගන්න.

උපදෙස්:

* මෙම ප්‍රශ්න පත්‍රය **I, II** හා **III** වශයෙන් කොටස් **තුනකින්** සමන්විත වේ.
* **I** කොටසේ **1** හා **2** ප්‍රශ්න අනිවාර්ය වේ.
* **II** හා **III** කොටස්වලින් **අඩම වශයෙන් එක්** ප්‍රශ්නය බැගින් තෝරාගෙන, අනිවාර්ය ප්‍රශ්න **දෙක** ද ඇතුළුව ප්‍රශ්න **පහකට** පිළිතුරු සැපයිය යුතු ය.
* සෑම ප්‍රශ්නයකම **(i)** කොටසට ලකුණු **06**ක් ද **(ii)** කොටසට ලකුණු **06**ක් ද **(iii)** කොටසට ලකුණු **08**ක් ද වශයෙන් මුළු ලකුණු **20**ක් බැගින් හිමි වේ.

I කොටස

1. (i) පහත සඳහන් බෙර පද අතුරෙන් ඔබ උගත් නර්තන සම්ප්‍රදායට අයත් බෙරපදය තෝරා නිවැරදිව ප්‍රස්තාර කරන්න.

(අ) ගොග් ගොග් ජිං ජිං ගත
(ආ) දිත්තම් දිනකු දොම් දොම් නාම්
(ඉ) කුදත් තක්කිට තකිට ජිමිතකු

(ii) පහත දැක්වෙන කවි පදය මැදුම් මහ දෙකිනට ප්‍රස්තාර කරන්න.
තුරු රත්න සිරි ලෙසිනා නිලිණ නෙක
දෙන නිත්‍ය සන්තොසිනා

(iii) ගණපති වන්නමේ අඩව්ව හෝ ලලිතරාග තාලය සින්දු වන්නමේ ඉරට්ටිය හෝ සිසරා වන්නමේ අඩව්ව හෝ ප්‍රස්තාරගත කරන්න.

2. ශ්‍රී ලාංකේය නර්තන සහ වාදන කලාවේ විකාසනය පිළිබඳ අධ්‍යයනයේදී ඓතිහාසික මූලාශ්‍රය වැදගත් වේ.

(i) කුරුණෑගල යුගයේ සාහිත්‍ය මූලාශ්‍රය **දෙකක්** ඇසුරෙන් තූර්ය වාදන කලාව පිළිබඳ විරික්සන්න.

(ii) පොලොන්නරු යුගයේදී නර්තන කලාව සඳහා රාජ අනුග්‍රහය ලැබී ඇති බව මූලාශ්‍රය **දෙකක්** ඇසුරෙන් නඟවුරු කරන්න.

(iii) මහනුවර යුගයේ නර්තන කලාවේ ස්වභාවය පහත සඳහන් විදේශිකයන්ගේ ලේඛන ඇසුරෙන් විමසන්න.

(අ) ස්පිල් බර්ජන්
(ආ) රොබට් නොක්ස්
(ඉ) ජෝන් ඩේව්

CamScanner

II කොටස

3. (i) 'බලි' යන්නෙහි වචනාර්ථය සාහිත්‍යගත කරුණු **තුනක්** ඇසුරෙන් පැහැදිලි කරන්න.

(ii) වලියක් මංගල්‍යයට ආවේණික චාරිත්‍ර **දෙකක්** විස්තර කරන්න.

(iii) නානුමුරයේදී වාචික සහ ආහාර්ය අභිනය යොදාගෙන ඇති ආකාරය උදාහරණ සහිතව විමසන්න.

4. (i) උෆරා යක්කමෙන් හෙළිවන තත් කාලීන සමාජ විවරණය කවි **දෙකක්** ඇසුරෙන් පිරික්සන්න.

(ii) මඩුපුරේ කවි සහ ග්‍රහපංති කවි යන ශාන්තිකර්ම ගායනා පිළිබඳ කෙටියෙන් පැහැදිලි කරන්න.

(iii) "ශාන්තිකර්ම කතා ප්‍රවත් මඟින් බෞද්ධාගමික ඉගැන්වීම් පිළිබිඹු කෙරේ". සන්නියකුම ශාන්තිකර්මයේ උපත් කතා ඇසුරෙන් සාකච්ඡා කරන්න.

5. (i) මෝල්ගස් සහ තුලු නැටුම් ශ්‍රී ලාංකේය ජන සමාජයෙහි අනන්‍ය ලක්ෂණ විශද කරයි. පැහැදිලි කරන්න.

(ii) කෝලම් නාටකය මඟින් රස නිෂ්පත්තිය සිදුවන ආකාරය මූදලි සහ හෙන්චප්පු චරිත ඇසුරෙන් සාකච්ඡා කරන්න.

(iii) ගැටබෙරය සකස් කිරීමේදී යොදාගන්නා අමුද්‍රව්‍ය සහ භාවිත කරනු ලබන මිනුම් ක්‍රමයන්හි වැදගත්කම් අගයන්න.

III කොටස

6. පහත සඳහන් වගුවෙහි (අ), (ආ) සහ (ඉ) යන කොටස්වලට අදාළව අසා ඇති ප්‍රශ්නවලට පිළිතුරු සපයන්න.

(අ) කොටස	(ආ) කොටස	(ඉ) කොටස
භරත	ඇමරිකාව	ක්ෂේත්‍රඥ
කථක්	බ්‍රිතාන්‍ය	නාරායන තීර්ත
කථකලි	ප්‍රංශය	ජයදේව
මණිපුරි	රුසියාව	වඩිවේලු

(i) (අ) කොටස - උතුරු ඉන්දියානු නර්තන සම්ප්‍රදාය නෝරා එහි කාන්තා රංග වස්ත්‍රාභරණ පිළිබඳ විස්තර කරන්න.

(ii) (ආ) කොටස - දහසය වැනි සියවසේ බැලේ නර්තනය ව්‍යාප්ත වූ රට නෝරා එහිදී එම රංග කලාව සංවර්ධනය වූ ආකාරය පැහැදිලි කරන්න.

(iii) (ඉ) කොටස - භරත නාට්‍යම් සම්ප්‍රදායේ සංගීතඥයා නෝරා ඔහුගේ පරපුර පිළිබඳ විවරණය කරන්න.

7. (i) චරිතාත්මක අංගරචනයේදී වර්ණ, රේඛා හා හැඩතල භාවිතය පිළිබඳ විස්තර කරන්න.

(ii) අද්‍යතන වන්නම් රචනාවීමට බලපෑ හේතු සාධක **තුනක්** සාකච්ඡා කරන්න.

(iii) විදේශීය නර්තන කලාව, දේශීය නර්තනයේ පැවැත්ම සහ ව්‍යාප්තිය කෙරෙහි අභියෝග එල්ල කරයි. විචාරන්න.

8. (i) රියැලිටි වැඩසටහන්වල භාවිත ආලෝකකරණය සහ ඩිජිටල් වේදිකා පසුතල ප්‍රේක්ෂක ආකර්ෂණය සඳහා දායකවන්නේ කෙසේ ද? විස්තර කරන්න.

(ii) රියැලිටි වැඩසටහන්වල අධ්‍යාපනික සහ සංස්කෘතික වටිනාකමක් තිබේ ද? ඔබගේ අදහස් දක්වන්න.

(iii) වෙස් මංගල්‍යය/පායිමපත් මංගල්‍යය/ගිර්ෂාභරණ පැලඳවීම/කලඑළි මංගල්‍යය පැවැත්වීමේ නව ප්‍රවණතා සාම්ප්‍රදායික නර්තනයේ සංරක්ෂණයට හේතු වේ ද? විමසන්න.

* * *

CamScanner

I කොටස

1. (i) පහත සඳහන් බෙර පද අනුරෙන් ඔබ උගත් නර්තන සම්ප්‍රදායට අයත් බෙරපදය තෝරා නිවැරදිව ප්‍රස්තාර කරන්න.

(අ) ගොග් ගොග් ජිං ජිං ගත

(ආ) දිත්තම් දිතකු දොම් දොම් තාම්

(ඉ) කුදත් තක්කිට තකිට ජිමිතකු

උඩරට

ගොග් ගොග් ජිං ජිං ගත

∧		∧		∧		/			
1	2	1	2	1	2	1	2	3	4
ගොග්	-	ගොග්	-	ජිං	-	ජිං	-	ග	ත

පහතරට

දිත් තම් දිතකු දොම් දොම් තාම්

∧		∧		/			∧		∧		/		
1	2	1	2	1	2	3	1	2	1	2	1	2	3
දිත්	-	තම්	-	දි	ත	කු	දොම්	-	දොම්	-	තාම්	-	-

ප 2 කට වඩා අවුනම් ල. 1 ක අවසන්න.

සබරගමු

කුදත් තක්කිට තකට ජිමිතකු

/			∧		∧		/			∧		∧	
1	2	3	1	2	1	2	1	2	3	1	2	1	2
කු	දත්	-	තක්	-	කි	ට	ත	ක	ට	පි	මි	ත	කු

නිවැරදි විභාගවලට වෙන් කිරීම හා සංකේත භාවිතයට ලකුණු 02
බෙර පදය නිවැරදිව ප්‍රස්තාර කිරීමට ලකුණු 04
මුළු ලකුණු 06

PAST PAPERS WIKI

CamScanner

(ii) පහත දැක්වෙන කවි පදය මැදුම් මහ දෙතිතට ප්‍රස්තාර කරන්න.

තුරු රත්න සිරි ලෙසිනා තිලිණ නෙක
දෙන නිත්‍ය සන්තොසිනා

^			/				^			/			
1	2	3	1	2	3	4	1	2	3	1	2	3	4
තු	රු	-	රත්	නා	න	-	සි	රි	-	ලෙ	-	සි	-
නා	-	-	-	-	නි	-	ලි	ණ	-	නෙ	-	ක	-
දෙ	න	-	නි	න්‍ය	ත්‍ය	-	සත්	-	-	තො	-	සි	-
නා	-	-	-	-	-	-	-	-	-	-	-	-	-

නිවැරදි විභාගවලට වෙන්කිරීම හා සංකේත භාවිතයට ලකුණු 02
කවි පදය නිවැරදිව ප්‍රස්තාර කිරීමට ලකුණු 04
මුළු ලකුණු 06

(iii) ගණපති වන්නමේ අඩව්ව හෝ ලලිතරාග තාලය සින්දු වන්නමේ ඉරට්ටිය හෝ තිසරා වන්නමේ අ
හෝ ප්‍රස්තාරගත කරන්න.

උඩරට - ගණපති වන්නමේ අඩව්ව හෝ

/			/			/			/		
1	2	3	1	2	3	1	2	3	1	2	3
නා	-	-	ත	ක	ට	තරි	කිට	දොද්	දොම්	-	-
තරි	කිට	දොද්	දොම්	ගත්	තත්	තරි	කිට	දොද්	දොම්	-	-
ගත්	-	ත	කු	ත	ක	ජිත්	-	ත	කු	ත	ක
තරි	කිට	දොද්	දොම්	ගත්	තත්	තරි	කිට	දොද්	දොම්		

❖ මීට අමතරව පහත දක්වා ඇති අඩව්ද නිවැරදිව ප්‍රස්තාර කර ඇත්නම් ඒ සඳහා ලකුණු ද
දිය හැකිය.

I. ගත්ත තෙහිගු තකට තකුද
II. තාත් ජිංත ජිංත ජිතරි
III. තාත් පිංත ජිංත ජිං.....

CamScanner

පහතරට - ලලිතරාග කාලයේ ඉරට්ටිය හෝ

/			/			/			/		
1	2	3	1	2	3	1	2	3	1	2	3
ගත්	තම්	දොම්	ත	ගත්	ගත	ගුගු	දිත	තරි	තත්	දින්	තොං
නං	දෙග	තත්	ගති	ගත	ගත	ගත්	දිත	ගත	ගත්	තම්	දොම්
තා											

සබරගමු - තිසරා වන්නමේ අඩව්ව

/			/			/			/		
1	2	3	1	2	3	1	2	3	1	2	3
ජෙං	-	ත	ත	ක	ට	දිරි	කිට	තරි	කිට	ග	ත
ග	ත	කු	ඳ	ග	ත	ග	තත්	-	ජෙ	ජෙං	-
තත්	-	කිත්	-	තත්	-	කි	තත්	-	ජෙ	ජෙං	-
තා	-	කුන්	දත්	තරි	කිට	ග	තත්	-	කු	කු	ඳ
තා											

නිවැරදි විභාගවලට වෙන් කිරීම හා සංකේත භාවිතයට ලකුණු 02
අඩව්ව/ ඉරට්ටිය නිවැරදිව ප්‍රස්තාර කිරීමට ලකුණු 06
මුළු ලකුණු 08

2. ශ්‍රී ලාංකේය නර්තන සහ වාදන කලාවේ විකාසනය පිළිබඳ අධ්‍යයනයේදී ඓතිහාසික මූලාශ්‍රය වැදගත් වේ.

(i) කුරුණෑගල යුගයේ සාහිත්‍ය මූලාශ්‍රය **දෙකක්** ඇසුරෙන් තූර්ය වාදන කලාව පිළිබඳ පිරික්සන්න.

❖ සාහිත්‍ය මූලාශ්‍රය

- සිංහල ථූපවංශය
  ගැටබෙර, පනාබෙර, එකැස්බෙර, මිහිඟු බෙර, මද්දල, භෘංග වීණා, තකුල වීණා, සමුදු සෝෂ, රණ රංග සෝෂා .....

- දළදා සිරිත
  සක් පඤ්ච, වඩ්ඩාරු, දළහං මද්දල, මහුමකුඩම්, පනාබෙර, මිහිඟු බෙර, ඩමරු, ඩැක්කි, උඩැක්කි, තලප්පර .....

- උම්මග්ග ජාතකය
- ඒ වේදේහ රජුගේ විධානයෙන් ආනත, විතත, විතතාතත, ඝනය, සුසිරය යනාදී පංච වාර්ගික තූර්ය නාද පැවැත්වූ බව

මූලාශ්‍රය දෙකක් නිවැරදිව හඳුනාගැනීමට ලකුණු 02
තූර්ය වාදන කලාව පිළිබඳ විමසා ඇත්නම් 2 x 2 ලකුණු 04
මුළු ලකුණු 06

CamScanner

(ii) පොලොන්නරු යුගයේදී නර්තන කලාව සඳහා රාජ අනුග්‍රහය ලැබී ඇති බව මූලාශ්‍රය **දෙකක්** ඇසුරෙන් තහවුරු කරන්න.

❖ සාහිත්‍ය හා පුරාවිද්‍යාත්මක මූලාශ්‍රය

- මහා පරාක්‍රමබාහු රජු සරස්වතී මණ්ඩපය ඉදි කරවූ බව - මහාවංශය
- නිශ්ශංකලතා මණ්ඩපය ඉදි කරවූ බව - චූලවංශය
- රූපාවතී බිසව නර්තනයේ දක්ෂ වූ බවත්, තම සෙබළුන්ගේ ආශ්වාදය පිණිස රඟුම් පැවැත් වූ බව - චූලවංශය
- රජු කාව්‍ය ශාස්ත්‍ර ගීත, නැටුම් ඉගෙන ගත් බව හා ඇලුම් කළ බව - චූලවංශය
- නගර නිර්මාණයේදී නාට්‍ය ශාලා 05 ක් ඉදි කළ බව - චූලවංශය
- නිශ්ශංකමල්ල රජු නවග්‍රහ බලි ශාන්තිකර්මයක් කළ බව - චූලවංශය
- නිශ්ශංකමල්ල රජු ඉදිකළ සැටදාගෙයි බිත්ති දෙපස ඇති රූකම් ඇසුරින්
- නිශ්ශංකමල්ල අනුරූ සෙල්ලිපිය - බෙරලවා....
- කාලිංග වනෝද්‍යාන ගල් ආසන ලිපිය - නෘත්‍ය ගීත නැරඹූ බව

මූලාශ්‍රය දෙකක් නිවැරදිව හඳුනාගැනීමට ලකුණු 02
මූලාශ්‍රය ඇසුරින් තහවුරු කිරීමට 2 x 2 ලකුණු 04
මුළු ලකුණු 06

(iii) මහනුවර යුගයේ නර්තන කලාවේ ස්වභාවය පහත සඳහන් විදේශිකයන්ගේ ලේඛන ඇසුරෙන් විමසන්න.

(අ) ස්ටිල් බර්ජන්
(ආ) රොබට් නොක්ස්
(ඉ) ජෝන් ඩේව්

(අ) . ස්ටිල් බර්ජන්

- විදේශීන් දුටු පුරාණ ලංකාව
  " මහනුවර පෙරහැරේ රැමත් නරුණියෝ උස්සනට නටන්....."

(ආ) . රොබට් නොක්ස්

- එදා හෙළදිව
  " විහාර දේවාලවල සේවාව සඳහා නියම වූ කුලවලින් පැමිණි අය..... "

(ඉ) . ජෝන් ඩේව්

- ඩේව් දුටු ලංකාව
  රජවාසල සම්බන්ධ ආයතන පහක් නිර්මාණය කළ බව

විදේශීය ලේඛන හඳුනා ගැනීමට ලකුණු 02
නර්තන කලාවේ ස්වභාවය විමසීමට 2 x 3 ලකුණු 06
මුළු ලකුණු 08

II කොටස

3. (i) 'බලි' යන්නෙහි වචනාර්ථය සාහිත්‍යගත කරුණු **තුනක්** ඇසුරෙන් පැහැදිලි කරන්න.

❖ සාහිත්‍යගත තොරතුරු

- දීඝනිකාය - තරවරයාට දෙනු ලබන තෑග්ග (බද්ද) බලි යන්නෙන් හඳුන්වන බව
- බෞද්ධ සාහිත්‍යය - භූතයන්, නාගයන්, යක්ෂයන්, දේවතාවන් වෙනුවෙන් සිදු කරනු ලබන පූජා බලි ලෙස හඳුන්වන බව
- සුතසෝම ජාතකය - දෙවියන් වෙනුවෙන් කරන ලද පූජා බලි ලෙස අර්ථ දක්වා ඇති බව
  - පංචබලි පිදූ බව
- අභිධානප්පදීපිකාව - කපුටන් වෙනුවෙන් කළ පූජාවක් බව
- බ්‍රාහ්මණ සාහිත්‍යය - බිලි දීම අර්ථයෙන් ද බලි යන්න විග්‍රහ වන බව

මුලාශ්‍රය නැතත් 3 ක් ඉන්න.

කරුණු තුනක් ඇසුරෙන් පැහැදිලි කිරීමට 2 x 3 ලකුණු 06
මුළු ලකුණු 06

(ii) වලියක් මංගල්‍යයට ආවේණික චාරිත්‍ර **දෙකක්** විස්තර කරන්න.

- පරහද ගෑම
- සිවිලිය වැඩමවීම
- ගවරමල, සොලොස්මගල, සිවිලි වළං සැකසීම
- පළමු දිනයේ සිට සත්වන දිනය දක්වා මාලිගාවේ තේවා හේවිසි වාදනය සමග චාරිත්‍ර ආරම්භ කිරීම
- කාලි යෑම
- කිල බැඳීම
- ඒකාවැලේ පඬුරු ගැට ගැසීම
- ආලත්ති බෑම

ආවේණික චාරිත්‍ර දෙකක් නම් කිරීමට ලකුණු 02
විස්තර කිරීමට 2 x 2 ලකුණු 04
මුළු ලකුණු 06

(iii) නානුමුරයේදී වාචික සහ ආහාර්ය අභිනය යොදාගෙන ඇති ආකාරය උදාහරණ සහිතව විමසන්න.

❖ වාචික අභිනය යොදා ගැනීම

- කෙටි කවි, දිග කවි, දෙබස් හා සංවාද මගින් ඉදිරිපත් කරන බව
- අවස්ථාවට උචිත තාල කවි ගායනය යොදා ගන්නා බව
  - නානු සකස් කිරීම
  - හිස පීරීම
  - දිය නෑම
  - සළු පැලඳීම

බලි කුලේ අය්ට තමන්ටි ගාස්සන් ලඟක තිබුන අවස්ථා තිබුනෙ. ඒත් මිය ගිහින් ඒ ඇත.

❖ ආහාර්ය අභිනය යොදා ගැනීම

- ගැහැණු වෙස් ගත් ඇදුරා රිද්දි බිසව ලෙස සමාරෝපය වන බව
- හේලය, හැට්ටය, පච්චවඩම, පිටවරල, තෝඩු, මාල, නළල් පටි ආදිය පැලඳින බව
- ස්වාභාවික ද්‍රව්‍යවලින් අංග රචනය කරන බව
- නානුමුර වට්ටියට (උනුනු පියන) තෙල් කුප්පිය, කැඩපත, පහාව, සබන්කැල්ල ..... රංගෝපකරණ ඇතුළත් කරගන්නා බව

+ සෙන්සිබිලි වලින් දැක්වෙන.

වාචික අභිනය උදාහරණ දෙකක් සහිතව විස්තර කිරීමට ලකුණු 04
ආහාර්ය අභිනය උදාහරණ දෙකක් සහිතව විස්තර කිරීමට ලකුණු 04
මුළු ලකුණු 08

4. (i) ඌරා යක්කමෙන් හෙළිවන තත් කාලීන සමාජ විවරණය කවි **දෙකක්** ඇසුරෙන් පිරික්සන්න.

- තත්කාලීන සමාජය විවරණය වන ඌරා යක්කමෙන් කවි දෙකක් ලියා ඇති බව හා ඒ ඇසුරෙන්
  - සාමූහික බව
  - කුල භේදය, පන්ති භේදය
  - වගකීම් හා යුතුකම් ඉටුකළ යුතු බව
  - කෘතගුණ සැලකීම

  යන කරුණු මගින් තත්කාලීන සමාජය විවරණය කර ඇති බව

කවි දෙකක් තෝරා ගැනීමට ලකුණු 02
සමාජ තත්ත්වය විවරණය විස්තර කිරීමට ලකුණු 04
මුළු ලකුණු 06

කවි නෑකුව ඇති දෙන්න.

(ii) මඩුපුරේ කවි සහ ග්‍රහපංති කවි යන ශාන්තිකර්ම ගායනා පිළිබඳ කෙටියෙන් පැහැදිලි කරන්න.

❖ මඩුපුරේ කවි ගායනා

- මඩුපුරයේ කවි යනු මඩුවේ දිග පළල (මිනුම්) සැරසිලි පිළිබඳ විස්තර කරන කවි බව
- පත්තිනි හා වීරමුණ්ඩ දෙවියන් වෙනුවෙන් කවි ගායනා කරන බව
- පූජා භාණ්ඩය ලෙස පොල් මල යොදා ගන්නා බව
- විවිධ තාල රූප හා නාද මාලා අනුව කවි ගායනා කරන බව
- කුල ක්‍රමය ගායනාවලින් හෙළි වන බව
- මඩු සැරසිලි පිළිබඳ විස්තර කරන බව

❖ ග්‍රහපන්ති කවි ගායනා

- ග්‍රහපන්ති කවි යනු නවග්‍රහයින්ගේ වාහන, විමාන, වර්ණ භෝජන..... විස්තර කෙරෙන කාව්‍යාවලියක් බව
- සම්ප්‍රදායන් ත්‍රිත්ත්වයේම බලි ශාන්තිකර්මයන්හි නවග්‍රහයින් උදෙසා කවි ගායනා කරන බව
- විවිධ තාලරූප නාදමාලා අනුව ගායනය කරන බව
- කවි ගායනයේදී තාල තැබීමට අත්මිණිය විශේෂයෙන් භාවිත කරන බව

මඩුපුරේ සහ ග්‍රහ පන්ති කවි ගායනා උදාහ සහිතව පැහැදිලි කිරීමට 3 x 2 ලකුණු 06
මුළු ලකුණු 06

CamScanner

(iii) "ශාන්තිකර්ම කතා පුවත් මඟින් බෞද්ධාගමික ඉගැන්වීම් පිළිබිඹු කෙරේ". සන්නියකුම ශාන්තිකර්මයේ උපත් කතා ඇසුරෙන් සාකච්ඡා කරන්න.

❖ සංඛපාල කතාව හා සම්බන්ධ බෞද්ධාගමික පසුබිම
- ප්‍රාණඝාතය
- පළිගැනීම
- ක්‍රෝධය
- වෛරය.... යනාදිය සමාජයට හිතකර නොවන බව

❖ දංඑදියා කතාව හා සම්බන්ධ බෞද්ධාගමික පසුබිම
- බොරුවෙන් ජීවත්විය නොහැකි බව
- සමාජය මුලා කිරීම
- කර්ම විපාක පළදෙන බව.....

ආදී කරුණු ඇසුරෙන් බෞද්ධාගමික ඉගැන්වීම් විස්තර කර තිබේ නම්

උපත් කථා ඇසුරින් කරුණු දෙකක් බැගින් ගෙන සාකච්ඡා කර තිබීම 4 x 2 ලකුණු 08
මුළු ලකුණු 08

5. (i) මෝල්ගස් සහ කුලු නැටුම ශ්‍රී ලාංකේය ජන සමාජයෙහි අනන්‍ය ලක්ෂණ විශද කරයි. පැහැදිලි කරන්න.

මෝල්ගස් හා කුළු නැටුම

- ජීවන වෘත්තීන් පිළිබිඹු කරන ගැමි නැටුම් දෙකක් බව
- කෘෂිකර්මාන්තය පදනම් වී නිර්මාණය කර වී බව
- සරළ බව
- සාමූහික බව
- ඇදහිලි හා විශ්වාස මත පදනම් වී ඇති බව
- ජන සමාජයේ මෝල්ගස සහ කුල්ල භාවිත කරන ආකාරය නිරූපණය වන බව

කරුණු කුනක් ඇසුරින් අනන්‍යතා ලක්ෂණ පැහැදිලි කර ඇත්නම් ලකුණු 3 x 2 ලකුණු 06
මුළු ලකුණු 06

(ii) කෝලම් නාටකය මඟින් රස නිෂ්පත්තිය සිදුවන ආකාරය මුදලි සහ හෙන්චප්පු චරිත ඇසුරෙන් සාකච්ඡා කරන්න.

- මුදලිගේ චරිතයෙන් වීර රසයත්, හෙන්චප්පුගෙන් හාස්‍ය රසයත් නිෂ්පන්න වන බව
  - පද්‍ය හා සංවාද
  - නර්තන හා වාදන
  - රූපණ අවස්ථා
  - රංග වස්ත්‍රාභරණ
  - රූපණ අවස්ථා

ඉහත කරුණු ඇසුරෙන් රස නිෂ්පත්තිය සිදුවන අයුරු විස්තර කර ඇති බව

චරිත දෙක ඇසුරින් සාකච්ඡා කර ඇත්නම් 3 x 2 ලකුණු 06
මුළු ලකුණු 06

CamScanner

(iii) ගැටබෙරය සකස් කිරීමේදී යොදාගන්නා අමුද්‍රව්‍ය සහ භාවිත කරනු ලබන මිනුම් ක්‍රමයන්හි වැදගත්කම් අඟයන්න.

ගැටබෙරයෙහි අමුද්‍රව්‍ය යොදා ගැනීම

- ලී වර්ග ලෙස - ඇහැළ, කොහොඹ, වරකා, ගංසූරිය, මිල්ල, දේවදාර.... ගන්නා බව
- හම් වර්ග ලෙස - දකුණු ඇසට - වඳුරු, තලගොයි, එළු හම්

  වම් ඇසට - මුව, හරක් හම් යොදා ගන්නා බව
- ගැට වැල් සඳහා - කිරිඳි වැල්, කුකුල වැල්, වේ වැල් යොදා ගන්නා බව
- ලෝහ වර්ග ලෙස - පිත්තලෙන් නිමවූ ගිගිරි වළල්ල යොදා ගන්නා බව

මිනුම් ක්‍රම

- බෙරයේ දිග - තුන් වියත් තුනගුලයි
- බෙර ඇසෙහි විශ්කම්භය - විග්ගුස්සයි
- බෙර ඇසෙහි දෙඇස - එකිනෙකට වෙනස්ය
- වරපටෙහි දිග - සත් බඹ සත් අතයි
- බෙර කටෙහි සණකම - අඟල් 1/2 ට වඩා මදක් අඩුවිය යුතුය

අමුද්‍රව්‍ය සහ භාවිත මිනුම් ක්‍රමයන්හි වැදගත්කම ඇගයීම 4 x 2 ලකුණු 08
මුළු ලකුණු 08

III කොටස

6. පහත සඳහන් වගුවෙහි **(අ)**, **(ආ)** සහ **(ඉ)** යන කොටස්වලට අදාළව අසා ඇති ප්‍රශ්නවලට පිළිතුරු සපයන්න.

(අ) කොටස	(ආ) කොටස	(ඉ) කොටස
භරත	ඇමරිකාව	ක්ෂේත්‍රඥ
කරක්	බ්‍රිහාන්ය	නාරායන තීර්ත
කථකලි	ප්‍රංශය	ජයදේව
මනිපුරි	රුසියාව	වඩිවේලු

(i) **(අ)** කොටස - උතුරු ඉන්දියානු නර්තන සම්ප්‍රදාය තෝරා එහි කාන්තා රංග වස්ත්‍රාභරණ පිළිබඳ විස්තර කරන්න.

(අ) කොටස - කථක්

උත්තර භාරතීය කාන්තා ඇඳුමක ස්වරූපයෙන් නිර්මාණය වී තිබෙන බව

- චුඩිදාර් - පිජාමා
- ලෙහෙඟා - රැළි සාය
- ගාඟරා - චෝලි
- දෘපට්ටා - සළුව, වේල්
- ජුන්කා - කරාබු
- ඟුංඟුරු
- ජාරි.....

නර්තන සම්ප්‍රදාය තෝරා ගැනීමට ලකුණු 02
කාන්තා රංගවස්ත්‍රාභරණ හතරක් විස්තර කිරීමට ලකුණු 04
මුළු ලකුණු 06

CamScanner

(ii) (ආ) කොටස - දහසය වැනි සියවසේ බැලේ නර්තනය ව්‍යාප්ත වූ රට තෝරා එහිදී එම රංග කලාව සංවර්ධනය වූ ආකාරය පැහැදිලි කරන්න.

(ආ) කොටස - ප්‍රංශය

- කැතරින් ඩි මෙඩිසි බිසව හා ප්‍රංශයේ දෙවන හෙන්රි රජුගේ විවාහයෙන් ප්‍රංශයේ බැලේ රංගකලාව ආරම්භ වූ බව
- ඉතාලි රාජසභාවේ සිටි බල්තසාර්ජි බ්‍රියුජොලක්ස් (Balthaza de braujoyeulx) ප්‍රංශ රාජ සභාවේ නිර්මාණ බිහිකළ බව
- 14 වන ලුවී රජුගේ දායකත්වයෙන් බැලේ සංවර්ධනය සිදු වූ බව
- ප්‍රංශයේ බැලේ රංග කලාවේ ව්‍යාප්තියට
  - ජීන් බැප්ටිස් ලුලී
  - පියුරේ බ්‍රියුචැම්ප් නිර්මාණකරුවන්ගේ දායකත්වය ලැබුණු බව
- කුලීනයන් අතර පැවති රංග කලාව ජීන් ජෝර්ජ් නොවැර් සාමාන්‍ය රසිකයාට රස විඳීමට සැලැස්වූ නර්තන කලාවක් බව

නර්තනය ව්‍යාප්ත වූ රට තෝරා ගැනීමට ලකුණු 02
අවම වශයෙන් කරුණු හතරක් විස්තර කිරීමට ලකුණු 04
මුළු ලකුණු 06

(iii) (ඉ) කොටස - භරත නාට්‍යම් සම්ප්‍රදායේ සංගීතඥයා තෝරා ඔහුගේ පරපුර පිළිබඳ විවරණය කරන්න.

(ඉ) කොටස - වඩිවේලු

- පන්දනාල්ලූර් පෙළපතට අයත් තාන්ජාවූර් සහෝදරයින්ගෙන් එක් අයෙකු බව
- චින්නයියා, පොන්නයියා, ශිවනාදන් සහෝදරයින්ගේ බාලයා බව
- වඩිවේලු ප්‍රකට සාහිත්‍යධරයෙකු මෙන්ම කර්ණාටක සංගීතඥයෙකු බව
- දේවදාසීන්ගෙන් ආරම්භ වූ "දාසි ආට්ටම්" වර්තමාන තත්ත්වය ගෙන එන ලද්දේ තාන්ජාවූර් සහෝදරයින් බව
- නර්තන ගුරුවරුන් ලෙස "නට්ටුවනාර්" නාමයෙන් හැඳින් වූ බව
- බෘහදීශ්වර දේවාලයේ ට්‍රැවන්කෝර් මාලිගයේ නට්ටුවනාර්වරයෙකු ලෙස සේවය කළ බව
- භරත නාට්‍යම් වාද්‍ය වෘන්දයට වයලීනය එක් කළ බව
- වර්තමාන අරංගේත්‍රම් අනුපිළිවෙලින් සකස් කරන ලද්දේ මෙම පරපුර විසින් බව

සංගීතඥයා තෝරා ගැනීමට ලකුණු 02
අවම වශයෙන් කරුණු හයක් සහිතව පරපුර පිළිබඳව විස්තර කිරීමට ලකුණු 06
මුළු ලකුණු 08

7. (i) චරිතාත්මක අංගරචනයේදී වර්ණ, රේඛා හා හැඩතල භාවිතය පිළිබඳ විස්තර කරන්න.

චරිතාත්මක අංග රචනයේදී

වර්ණ -

- අංගරචනා කලාවේ මූලිකාංගයක් බව
- ද්‍රව්‍ය හා අලෝක වර්ණ මනා කොට සුසංයෝග කිරීම සිද්ධාන්ත ක්‍රමයක් බව
- ශරීරය මත වර්ණ ගැන්වීම හා වර්ණ පදාසයන් මෙන්ම ජායිත දීපන පිළිබඳ දැනුවත් බව
- ප්‍රාථමික, ද්විතීයික හා තෘතීයික වර්ණ පිළිබඳව අවබෝධය වැදගත් බව

CamScanner

රේඛා -
- රේඛාව සුවිශේෂ වන බව
- ගැඹුරු ශිල්ප ක්‍රමයක් බව
- රේඛාව සඳහා වර්ණ පදාස මිශ්‍ර වූ විට සචිභාවය තීව්‍ර වන බව
- මුහුණ, ශරීරය හා යම් යම් ඉන්ද්‍රියන් මතු කර දැක්වීමට හැඩතල මැවීමද කළ හැකි බව
- ත්‍රිමාණ බව දැක්වීමට රේඛාව අවශ්‍ය බව

උදා:
සරල, තිරස්, සිරස්, රවුම්, චක්‍ර, සමාන්තර.... ආදී රේඛා

හැඩතල -
- මායිමක් විශේෂිත කොට දැක්වෙන ප්‍රදේශයක් බව
- මුහුණ විවිධ හැඩතල ගන්නා බව
- නර්තනයක් දිග හැර දැක්වීමේ දී සියලු ශිල්පීන්ගේ මුහුණු එකම හැඩයකට මැවිය හැකි බව

උදා:
අණ්ඩාකාර, ගෝලාකාර, සමචතුරස්‍රාකාර
ආයත, ත්‍රිකෝණාකාර, දියමන්ති

වර්ණ, රේඛා, හැඩතල භාවිතයෙන් චරිතාත්මක අංග රචනය
සියුකළ යුතු ආකාරය පිළිබඳ විස්තර කර ඇත්නම් 2 x 3 ලකුණු 06
මුළු ලකුණු 06

(ii) අද්‍යතන වන්නම් රචනාවීමට බලපෑ හේතු සාධක **තුනක්** සාකච්ඡා කරන්න.

- නර්තන නිර්මාණ ශක්‍යතාව අත්හදා බැලීම සහ ඉදිරිපත් කිරීමට වන්නම් නිර්මාණය කර ඇති බව
- ගායනය සඳහා නිර්මාණය වූ වන්නම් නර්තනයට උචිත ලෙස සකස් කර ඇති බව
- සමාජ විචරණය කිරීම සඳහා අද්‍යතන වන්නම් නිර්මාණය වූ බව
  උදා: මන්ත්‍රී, ගුරු දේව, ඇඟලුම් වන්නම
- සමස්ත ලංකා පාසල් තරග සඳහා නවතම වන්නම් නිර්මාණය කර ඇති බව

සාධක තුනක් ලියා ඇත්නම් ලකුණු 03
විස්තර කිරීමට ලකුණු 03
මුළු ලකුණු 06

(iii) විදේශීය නර්තන කලාව, දේශීය නර්තනයේ පැවැත්ම සහ ව්‍යාප්තිය කෙරෙහි අභියෝග එල්ල කරයි. විචාරන්න.

- විදේශීය නර්තනයන්හි ප්‍රාසංගික ලක්ෂණ ශ්‍රී ලාංකේය ප්‍රාසංගික අංගයන්ට බලපා ඇති බව
- විදේශ නර්තන කණ්ඩායම් සංදර්ශන පැවැත්වීම හා ඒවා අනුකරණය දේශීය නර්තනයට බලපෑ බව
- අන්තර්ජාල පහසුකම් මගින් විදේශීය නර්තන පහසුවෙන් ග්‍රහණය කරගත හැකිවීම සහ අධ්‍යයනය කළ හැකි බව
- නර්තනයේ පැවැත්ම හා ව්‍යාප්තියට විදේශීය ආභාසය හා සංකලනය බලපා ඇති බව
- විදේශීය රංග වස්ත්‍රාභරණවල ආභාසය බලපා ඇති බව
- විදේශීය නර්තනයට ආකර්ෂණයවීම හා දේශීය නර්තනයට යොමුවීම අවම වන බව
- විදේශීය අංගහාර දේශීය නර්තනයන්ට මුසු කිරීම අභියෝගයක් බව
- දේශීය නර්තන අනන්‍ය ලක්ෂණ හිලිහී යාම

කරුණු හතරක් ඇසුරින් විස්තර කර ඇත්නම් 2 x 4 ලකුණු 08
මුළු ලකුණු 08

Past Papers Wiki
CamScanner

8. (i) රියැලිටි වැඩසටහන්වල භාවිත ආලෝකකරණය සහ ඩිජිටල් වේදිකා පසුතල ප්‍රේක්ෂක ආකර්ෂණය සඳහා දායකවන්නේ කෙසේ ද? විස්තර කරන්න.

- අලෝකකරණය මගින් රංගනය මනා ලෙස ප්‍රේක්ෂකයාට දර්ශනය වන බව
- විවිධ විදුලි බුබුළු මගින් නර්තනයට විචිත්‍රත්වයක් එක්වන බව
- රසභාව උද්දීපනයට විදුලි ආලෝකය හේතු වන බව
- විවිධ පරිසර සංසිද්ධි මතුකරලීමට හැකි බව
- ඩිජිටල් වේදිකා පසුතල නර්තනාංග උද්දීපනය කිරීමට හැකි බව
- මායාකාරී මැවීම්, අද්භූත බලවේග හා නර්තන අංගයට උචිත පසුතල ඩිජිටල් වේදිකා පසුතල මගින් දැක්විය හැකි බව

නාත්‍යක විධිකුල් ගාන්ධාරය

ආලෝකය හා පසුතල මගින් ප්‍රේක්ෂක ආකර්ශණය සිදුවන අයුරු කරුණු තුනක් ඇසුරින් විස්තර කර
ඇත්නම් 3 x 2 ලකුණු 06
මුළු ලකුණු 06

(ii) රියැලිටි වැඩසටහන්වල අධ්‍යාපනික සහ සංස්කෘතික වටිනාකමක් තිබේ ද? ඔබගේ අදහස් දක්වන්න.

රියැලිටි වැඩසටහන්

- ඉදිරිපත් කිරීම
- ආකෘතිය
- නර්තන අංගවල ගුණාත්මකබව
- රංගාලෝකකරණය හා අංගරචනය
- ගායන වාදන
- රංග වස්ත්‍රාභරණ..... ආදී කරුණු ඇසුරෙන්,

අධ්‍යාපනික හා සංස්කෘතික වටිනාකම් ඇති බව හෝ නැති බව හෝ සාකච්ඡා කර ඇත්නම් ලකුණු 06
මුළු ලකුණු 06

කරුණු 3 ක

(iii) වෙස් මංගල්‍යය/පායිම්පත් මංගල්‍යය/ශිර්ෂාභරණ පැලඳවීම/කලඑළි මංගල්‍යය පැවැත්වීමේ නව ප්‍රවණතා සාම්ප්‍රදායික නර්තනයේ සංරක්ෂණයට හේතු වේ ද? විමසන්න.

- නර්තනාංග
- නර්තන චලන
- රංග වස්ත්‍රාභරණ
- චාරිත්‍ර වාරිත්‍ර
- අංගරචනා ක්‍රම
- සැරසිලි
- ගායන වාදන ආදිය මගින්

සාම්ප්‍රදායික නර්තනය සංරක්ෂණය වන බව හෝ නොවන බව
පිළිබඳ විමසුමට ලක් කර ඇත්නම් ලකුණු 08
මුළු ලකුණු 08

PAST PAPERS WIKI

***

WWW.PastPapers.WiKi

37

Downloaded From Past Papers WiKi - Sri Lanka's Largest Past Paper Bank

CamScanner