සියලු ම හිමිකම් ඇවිරිණි/ முழுப் பதிப்புரிமையுடையது/ All Rights Reserved

මධ්‍යම පළාත් අධ්‍යාපන දෙපාර්තමේන්තුව
மத்தியமாகாணகல்வித் திணைக்களம்
DEPARTMENT OF EDUCATION - CENTRAL PROVINCE

අ.පො.ස(උ/පෙළ) පෙරහුරු පරීක්ෂණය - 2025

ආර්ථික විද්‍යාව I	21	S	I	13 ශ්‍රේණිය	පැය දෙකයි

උපදෙස්:

* සියලු ම ප්‍රශ්නවලට පිළිතුරු සපයන්න.
* 1සිට 50 තෙක් වූ ප්‍රශ්න වලට නිවැරදි පිළිතුර තෝරා එහි අංකය සපයා ඇති උත්තර පත්‍රයේ (X) ලකුණ යොදන්න.

1) ආර්ථික සම්පත් සියල්ල පහසුවෙන්ම ප්‍රධාන කොටස් දෙකක් යටතේ වර්ගීකරණය කළ හැකි වනුයේ,

1. මූල්‍ය සම්පත් සහ මූල්‍ය නොවන සම්පත් වශයෙනි.
2. ස්වභාවික සම්පත් සහ ප්‍රාග්ධන සම්පත් වශයෙනි.
3. මානව සම්පත් සහ දේපළ සම්පත් වශයෙනි.
4. ප්‍රතිෂ්ඨාපනය කළ හැකි සම්පත් හා ප්‍රතිෂ්ඨාපනය කළ නොහැකි සම්පත් වශයෙනි.
5. දේපළ සම්පත් සහ සජීවී සම්පත් වශයෙනි.

2) නිවැරදි ප්‍රකාශය තෝරන්න

1. නිෂ්පාදන හැකියා මායිමක් මත පිහිටි සියලුම නිෂ්පාදන සංයෝග ආර්ථික කාර්යක්ෂමතාවය අතින් එක හා සමාන වේ.
2. නිෂ්පාදන හැකියා මායිමක් මත පිහිටි සියළුම නිෂ්පාදන සංයෝග නිෂ්පාදනයේ කාර්යක්ෂමතාවය අතින් එක හා සමාන නොවේ.
3. නිෂ්පාදන හැකියා මායිමක් මත පිහිටි සියලුම නිෂ්පාදන සංයෝග සම්පත් බෙදීයාමේ කාර්යක්ෂමතාව අතින් එක හා සමාන වේ.
4. නිෂ්පාදන හැකියා මායිම මත පිහිටි සියළුම නිෂ්පාදන සංයෝග ප්‍රශස්ත භාණ්ඩ මිශ්‍රණය පිළිබිඹු කරයි.
5. නිෂ්පාදන හැකියා මායිමක් මත පිහිටි සියළුම නිෂ්පාදන සංයෝග අතරින් එකක් පමණක් ආර්ථික කාර්යක්ෂමතාවය පිළිබිඹු කරයි.

3) වෙළෙඳපොළ ආර්ථිකයක සාර්ථකත්වය සඳහා අතිශය තීරණාත්මක වන්නේ කවරක්ද?

1. ස්වාර්ථයේ සඳහා අභිප්‍රේරණය.
2. දේපළ පිළිබඳ පෞද්ගලික හිමිකම.
3. පෞද්ගලික ව්‍යවසායකත්වය.
4. වෙළෙඳපොළ බලවේග ඔස්සේ තීරණ ගැනීම.
5. මිලයාන්ත්‍රණය මගින් සම්පත් වෙන් කිරීම.

4) සම්පත් බෙදා වෙන් කිරීම සඳහා වෙළෙඳපොළ මත රඳා පැවැත්ම සහ ප්‍රාග්ධනයේ රාජ්‍ය හිමිකම යන ලක්ෂණ සහිත ආර්ථික පද්ධතිය වන්නේ,

1. ලිබරල් වෙළෙඳපොල ආර්ථිකය
2. සමාජයීය වෙළෙඳපොළ ආර්ථිකය
3. සමාජවාදී ආර්ථිකය
4. ධනේශ්වර ආර්ථිකය
5. සමාජවාදී වෙළෙඳපොළ ආර්ථිකය

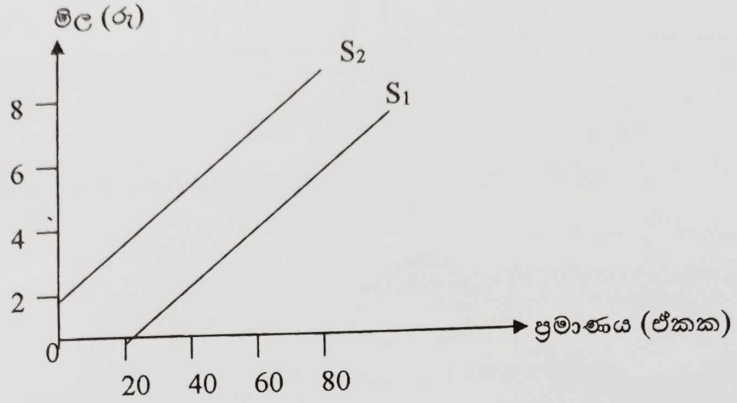
5) සැපයුම් වක්‍රයක් මත ලක්ෂයකින් පිළිබිඹු කරන්නේ,

1. භාණ්ඩයක සැපයුම් ප්‍රමාණයයි
2. භාණ්ඩයක සැපයුමයි
3. භාණ්ඩයේ මිලයි
4. භාණ්ඩයේ සමතුලිත ප්‍රමාණයයි
5. පාරිභෝගික වරණයයි

6) පහත සඳහන් දෑ අතුරින් ඉල්ලුම් වක්‍රය විතැන් කළ හැකි සාධකයක් නොවන්නේ,

1. ලබන මාසයේදී අදාළ භාණ්ඩයේ අපේක්ෂිත මිල වෙනස්වීම
2. සලකා බලන භාණ්ඩයේ මිල වෙනස්වීම
3. ආදේශන භාණ්ඩයක මිල වෙනස්වීම
4. අනුපූරක භාණ්ඩයක මිල වෙනස්වීම
5. පාරිභෝගිකයින් ගේ ආදායම වෙනස්වීම

7) එකිනෙකට සමාන්තර වන ලෙස පහිටන S1 හා S2 සැපයුම් වක්‍ර රූප සටහනෙහි දැක්වේ.රුපියල් 4 සහ රුපියල් 6 අතර මිල පරාසයේදී,



1. S_1 හා S_2සැපයුම් වක්‍රවල මිල නම්‍යතාවය සමාන වේ.
2. S_1 සැපයුම් වක්‍රයට වඩා S_2 සැපයුම් වක්‍රය මිල අනම්‍ය වේ.
3. S_2 සැපයුම් වක්‍රයට වඩා S_1 සැපයුම් වක්‍රයේ මිල අනම්‍ය වේ.
4. රුපියල් 4 හා රුපියල් 6 මිල පරාසයේදී වක්‍ර දෙකෙහිම මිල නම්‍යතාවය ඒකීය වේ.
5. S_1 සැපයුම් වක්‍රයේ රුපියල් 4 සිට රුපියල් 6 දක්වා වැඩිවන විට නම්‍යතාවය අඩුවේ.

8) නිෂ්පාදන ආයතනයක් තම භාණ්ඩය සඳහා ඇති ඉල්ලුමේ මිල නම්‍යතාවය - 1.25 බව දන්නේ නම්,ආයතනයට තම අයභාරය වැඩි කර ගැනීමට වුවමනා නම්,එම ආයතනය,

1. තම භාණ්ඩයේ මිල පහළ දැමිය යුතුය.මන්ද ඉල්ලුම නම්‍ය වන බැවිනි.
2. තම භාණ්ඩයේ මිල ඉහළ දැමියය යුතුය.මන්ද ඉල්ලුම අනම්‍ය වන බැවිනි.
3. තම භාණ්ඩයේ මිල පහළ දැමිය යුතුය.මන්ද ඉල්ලුම අනම්‍ය වන බැවිනි.
4. තම භාණ්ඩයේ මිල වෙනස් නොකළ යුතුය.මන්ද ඉල්ලුම ඒකීය නම්‍ය වන බැවිනි.
5. තම භාණ්ඩයේ මිල පහල දැමිය යුතුය.මන්ද ඉල්ලුම අපරිමිත වන බැවිනි.

9) තරගකාරී වෙළෙඳපොළ සමතුලිතයක ආර්ථික අතිරික්තය උපරිම වන්නේ,

1. සමතුලිත ප්‍රමාණයට වඩා අඩු ප්‍රමාණයක් පවතින විටදී
2. සමතුලිත ප්‍රමාණයට වඩා වැඩි ප්‍රමාණයක් පවතින විටදී
3. ඉල්ලුම් මිලට වඩා සැපයුම් මිල වැඩිවන විටදී
4. ඉල්ලුම් මිල සැපයුම් මිලට සමාන වන විටදී
5. ඉල්ලුම් මිලට වඩා සැපයුම් මිල අඩුවන විටදී

10) තරගකාරී පොල් වෙළඳපොළක පොල් සඳහා මිල ඉල්ලුම් හා මිල සැපයුම් සමීකරණ පහත දැක්වේ.

$P_d = 120 - 1/5Qd$ $Ps = 80+1/3\ Qs$

මෙම වෙළඳපොළෙහි පොල් ගෙඩියක මිල රුපියල් 100ක් ලෙස නියම කරනු ලැබුවහොත්,

1. ඒකක 40ක අධි සැපයුමක් හටගනී.
2. ඒකක 300 ක අධි ඉල්ලුමක් හටගනී.
3. ඒකක 350 ක අධි සැපයුමක් හටගනී.
4. ඒකක 40 ක අධි ඉල්ලුමක් හටගනී.
5. අධි ඉල්ලුම හා අධි සැපයුම ශූන්‍ය වේ.

AnyScanner
අ.පො.ස උසස් පෙළ සියලුම විෂයන්ට අදාල ප්‍රශ්න පත්‍ර/පිළිතුරු පත්‍ර/සටහන් ලබා ගැනීමට Past Papers Wiki වෙත පිවිසෙන්න

Past Papers Wiki

11) ඵලදායීතාවය වැඩිකිරීම සඳහා ගනුදෙනුකරුවන් මිල නිශ්චිතකිරීමට ලක්කිරීම ඔවුන්ට ඉහළ මිලක් ගෙවීමට සැලැස්වීම

1. සාමාන්‍ය මත ඒකක වැද්දක් පැනවීම
2. උපරිම මිලක් නියම කිරීම
3. සාධාරණ ප්‍රමාණයක් නියම කිරීම
4. අනාගත මත බදු වැද්දක් පැනවීම
5. අනාගත දිරිමත් කිරීම

12) යමක් ලබාගැනීම සඳහා ඉහළම කැමැත්ත දක්වනු ලබන සෑම අවස්ථාවකදීම අවසාන වැටුප් නියමයන් තෘප්තිමත් කිරීමට අවශ්‍ය වන අවම ප්‍රමාණය විසින් වඳු ඇත්තේ,

1. ශුද්ධ ඉල්ලුම සාපේක්ෂව නම්‍ය වේ නම්‍ය
2. ශුද්ධ ඉල්ලුම පූර්ණ නම්‍ය වේ නම්‍ය
3. ශුද්ධ ඉල්ලුම ඒකීය නම්‍ය වේ නම්‍ය
4. ශුද්ධ ඉල්ලුම සාපේක්ෂව අනම්‍ය වේ නම්‍ය
5. ශුද්ධ ඉල්ලුම පූර්ණ අනම්‍ය වේ නම්‍ය

13) ලේකඩවලේ සඳහා වෙළඳපොළ ඉල්ලුම් වක්‍රය $Qd = 150 - 2p$ ද වෙළඳපොළ සැපයුම් වක්‍රය $Qs = -30 + p$ ද වේ යැයි උපකල්පනය කරන්න. අලිගැට පේර ගෙඩියක් සඳහා රුපියල් 68 ක අවම මිලක් සහතික කෙරෙන උනන පූර්ණ ගෙවීම් ක්‍රමයක් ක්‍රියාත්මක කිරීමට රජය තීරණය කරනු ලැබේ යැයි සලකන්න. මෙම වැඩසටහන හේතුවෙන් සවියන්ට සමාජ සුභසාධන හානිය කොපමණද?

1. රු 48 කි.
2. රු 58 කි.
3. රු 456 කි.
4. රු 1440කි.
5. රු 1632 කි.

14) මිල අඩු කිරීමේ අරමුණින් අත්‍යවශ්‍ය භාණ්ඩයක් සඳහා ඒකක සහනාධාරයක් සැපයීමට රජය තීරණය කොට තිබේ. ඒකක සහනාධාරයේ ප්‍රතිඵල වශයෙන් භාණ්ඩයේ මිල වියාල ලෙස පහළ වැටෙනුයේ,

1. මිල ඉල්ලුම් නම්‍යතාව නම්‍ය වන විටදීය.
2. මිල ඉල්ලුම් නම්‍යතාව අනම්‍ය වන විටදීය.
3. මිල සැපයුම් නම්‍යතාව ඒකීය නම්‍ය වන විටදීය.
4. මිල සැපයුම් නම්‍යතාව අනම්‍ය වන විටදීය.
5. මිල ඉල්ලුම් නම්‍යතාව ඒකීය නම්‍ය වන විටදීය.

15) කෙටිකාලීන නිෂ්පාදන ක්‍රියාවලියේදී ආන්තික ඵලදාව උපරිම වීමෙන් පසු තවදුරටත් විචල්‍යය යෙදවුම් වැඩි කරන විට,

	ආන්තික ඵලදාව	සාමාන්‍ය ඵලදාව	මුළු ඵලදාව	ආන්තික පිරිවැය
1.	අඩුවේ	අඩුවේ	අඩුවේ	වැඩිවේ
2.	අඩුවේ	අඩුවේ	වැඩිවේ	වැඩිවේ
3.	අඩුවේ	වැඩිවේ	වැඩිවේ	වැඩිවේ
4.	වැඩිවේ	වැඩිවේ	උපරිම වේ	අඩුවේ
5.	අඩුවේ	අඩුවේ	ස්ථාවර වේ	අඩුවේ

16) කෙටි කාලයේදී පූර්ණ තරඟකාරී ආයතනයක් ආන්තික අයභාරය, අවම සාමාන්‍ය විචල්‍ය පිරිවැයට සමාන වන තත්ත්වයක නිෂ්පාදනයෙහි යෙදී සිටී. කෙටි කාලයේදී ආයතනය කළ යුත්තේ කුමක්ද?

1. නිෂ්පාදනය තවදුරටත් වැඩි කළ යුතුය.
2. නිෂ්පාදනය තවදුරටත් අඩු කළ යුතුය.
3. මිල වැඩි කරගෙන නිෂ්පාදන ක්‍රියාවලිය ප්‍රසාරණය කරගත යුතුය.
4. අලාභ ලබන හෙයින් නිෂ්පාදනය අතහැර කර්මාන්තයෙන් ඉවත් විය යුතුය.
5. අලාභ ලැබුවද තවදුරටත් නිෂ්පාදනයේ නිරත විය යුතුය.

17) තරඟකාරී වෙළෙඳපොළක කටයුතු කරන නිෂ්පාදන ආයතනයක නිමැවුම් ඒකක 1000 දී සාමාන්‍ය මුළු පිරිවැය රු150 කි. නිමැවුම් ඒකක 100ක් වන විට සාමාන්‍ය මුළු පිරිවැය රු 800කි. නිමැවුම් ඒකක 0 සිට 100 දක්වා ආන්තික පිරිවැය රු.300කි. මෙම ආයතනය ඒකක 1000ක් නිපදවන විට මුළු විචල්‍ය පිරිවැය වනුයේ,

1. රු.150,000කි
2. රු.30000කි
3. රු.50000කි
4. රු.100,000කි
5. රු.80,000කි

SCAN AnyScanner

18) කථිපයාධිකාරී වෙළඳපොළ ප්‍රවේශයට බාධාවක් නොවන්නේ,
1. ආයතන ලබන අතිප්‍රමාණික ලාභ 2. පරිමාණානුකූල පිරිමැසුම් 3. නෛතික සාධක
4. අලෙවිකරණ උපක්‍රම 5. දැඩි ප්‍රචාරණය

19) සාධක සේවා නියුක්ත කිරීමෙන් නිෂ්පාදන ආයතනයක ලාභ උපරිම කර ගැනීම සඳහා අදාළ මූලධර්මය වන්නේ,
1. ආන්තික ද්‍රව්‍යමය නිෂ්පාදිතය,ආන්තික අයහාර නිෂ්පාදිතයට සමාන වීම.
2. ආන්තික අයහාර නිෂ්පාදිතය,ආන්තික සාධක පිරිවැයට සමාන වීම.
3. මුළු ද්‍රව්‍යමය නිෂ්පාදිතය,ආන්තික සාධක පිරිවැයට සමාන වීම.
4. ආන්තික අයහාර නිෂ්පාදිතය,ආන්තික සාධක පිරිවැයට වඩා වැඩිවීම.
5. ආන්තික අයහාර නිෂ්පාදිතය,ආන්තික සාධක පිරිවැයට වඩා අඩුවීම.

20) විවෘත ආර්ථික ආදර්ශයකදී(open economy model)දළ දේශීය නිෂ්පාදිතයේ ඇස්තමේන්තු කිරීමේදී ඇතුළත් කරනුයේ,
1. පෞද්ගලික පරිභෝජන වියදම,රජයේ පරිභෝජන වියදම හා අපනයනයයි.
2. මුළු පරිභෝජන වියදම,දළ දේශීය ප්‍රාග්ධන සම්පාදනය හා අපනයනයයි.
3. අවසාන පරිභෝජන වියදම,දළ දේශීය ප්‍රාග්ධන සම්පාදනය හා ශුද්ධ අපනයනයයි.
4. අවසාන පාරිභෝජන වියදම,දළ ස්ථාවර ප්‍රාග්ධන සම්පාදනය හා ශුද්ධ අපනයනයයි.
5. පෞද්ගලික පාරිභෝජනය,රාජ්‍ය පාරිභෝජනය හා දළ ප්‍රාග්ධන සම්පාදනයයි.

21) ජාතික ගිණුම් සම්බන්ධයෙන් පහත සඳහන් කවර සංකල්පයක් සාවද්‍ය වේද?
1. පෞද්ගලික පාරිභෝජනය සඳහා ගෙවත්තේ එළවළු වගා කිරීම දළ දේශීය නිෂ්පාදිතය ගණනය කිරීමේදී ඇතුළත් කර ගනී.
2. වැය කළ හැකි දළ ජාතික ආදායමින් අවසාන පාරිභෝජන වියදම අඩු කිරීමෙන් ජාතික ඉතුරුම් අගය කළ හැකිය.
3. දළ ප්‍රාග්ධන සම්පාදනයට විදේශ ශුද්ධ ප්‍රාථමික ආදායම් හා විදේශ ශුද්ධ ද්විතියික ආදායම් එකතු කොට ජාතික ඉතුරුම් අගය කළ හැකිය
4. මිශ්‍රා ආදායම් යම් සියළු ආයතනික ඒකක විසින් උපයනු නොලැබේ.
5. මූල්‍ය වත්කම් ආශ්‍රිත ගනුදෙනු දළ දේශීය නිෂ්පාදිතයට ඇතුළත් කරගනු නොලැබේ.

22) එක්තරා ආර්ථිකයක පසුගිය වර්ෂයට අදාළ සාර්ව ආර්ථික දත්ත පහත දැක්වේ (වටිනාකම් රුපියල් මිලියන වලින්)
කුටුම්භ ඉතුරුම් 800 දළ දේශීය නිෂ්පාදිතය 10,000 මුළු රාජ්‍ය ආදායම 5400
රජයේ වර්තන වියදම 5600 පෞද්ගලික ඉතුරුම් 1400
මෙම ආර්ථිකයේ දේශීය ඉතුරුම් අනුපාතය වනුයේ,
1. 14% 2. 10% 3. 16% 4. 20% 5. 12%

23) ආන්තික පාරිභෝජන නැමියාව 0.9 ක් වන ආර්ථිකයක ස්වාධීන ආයෝජන රුපියල් බිලියන 200 ක් වැඩි කරන විට,එම ආර්ථිකයේ නිමැවුම රුපියල් බිලියන 2000ක් වැඩි විය.මෙම ආර්ථිකයේ ස්වාධීන බදු රුපියල් බිලියන 100ක් කපා හලහොත් නිමවුමේ සිදුවන වෙනස්වීම කොපමණද?
1. රුපියල් බිලියන1000ක් වැඩි වේ 2. රුපියල් බිලියන 1000ක් අඩුවේ
3. රුපියල් බිලියන 900ක් අඩුවේ 4. රුපියල් බිලියන 900ක් වැඩිවේ
5. රුපියල් බිලියන 2900ක් වැඩි වේ

24) කල්පිත ආර්ථිකයක් සඳහා සාර්ව ආර්ථික දත්ත පහත දැක්වේ.
ශුද්ධ අපනයන(Nx)= රු.මිලියන - 200 දළ ආයෝජනය (I) = රු.මිලියන 950
අයවැය හිඟය (BD) රු මිලියන 300

මෙම තොරතුරු වලට අදාල මෙම ආර්ථිකයේ ඉතුරු මට්ටම(S) කොපමණ වේද?
1. රුපියල් මිලියන1050 2. රුපියල් මිලියන950 3. රුපියල් මිලියන 850
4. රුපියල් මිලියන1000 5. රුපියල් මිලියන 900

AnyScanner
අ.පො.ස උසස් පෙළ සියලුම විෂයන්ට අදාල ප්‍රශ්න පත්‍ර/පිළිතුරු පත්‍ර/සටහන් ලබා ගැනීමට Past Papers Wiki වෙත පිවිසෙන්න

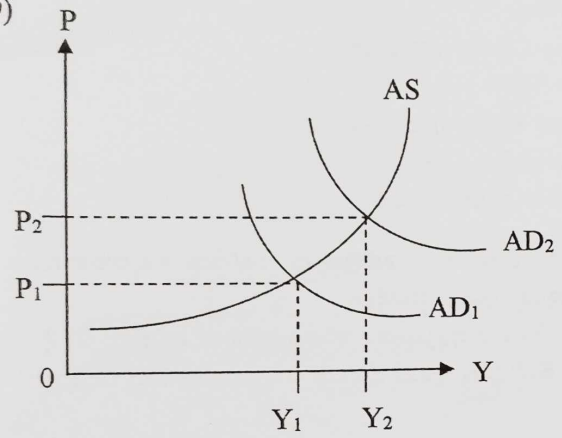
25) සාර්ව ආර්ථිකයක කෙටි කාලීන සමාහාර සැපයුම් වක්‍රයේ වමේ සිට දකුණට ඉහළට බෑවුම් වන්නේ,
1. පොලී අනුපාතය සමග අනුලෝම වන නිසා
2. මිල මට්ටම සමග අනුලෝම වන නිසා
3. මිල මට්ටම සමග ප්‍රතිලෝම වන නිසා
4. පොලී අනුපාතය සමග ප්‍රතිලෝම වන නිසා
5. තාක්ෂණය දියුණු වීම නිසා

26) මුදල් සැපයුම් පිළිබඳ M2b නිර්වචනයට ඇතුළත් නොවනුයේ පහත සඳහන් කවරක්ද?
1. මහජනයා සතු ව්‍යවහාර මුදල්
2. මහජනයා සතු ඉල්ලුම් තැන්පතු
3. මහජනයා සතු ඉතුරුම් තැන්පතු
4. ලියාපදිංචි මූල්‍ය සමාගම්වල ඉතුරුම් තැන්පතු
5. මහජනයා සතු කාලීන තැන්පතු

27) බැංකු පද්ධතියක් තුළ සිටින එක් බැංකුවක් සතුව රුපියල් මිලියන 500ක අඩි සංචිත පවතී.සංචිත අනුපාතය 20%කි.බැංකුව ගනුදෙනුකරුවකුට රුපියල් මිලියන 140ක් ණය වශයෙන් සපයන විට,ගනුදෙනුකරුවෙක් රුපියල් මිලියන 50ක් මෙම බැංකුවෙහි තැන්පත් කරයි නම් මෙම බැංකුවට අතිරේකව කොපමණ ණය ප්‍රමාණයක් ලබා දිය හැකිද?
1. රුපියල් මිලියන 250
2. රුපියල් මිලියන 550
3. රුපියල් මිලියන 400
4. රුපියල් මිලියන 540
5. රුපියල් මිලියන 350

28) පිරිවැයෙන් තල්ලු වූ උද්ධමනය සඳහා හේතු නොවන්නේ,
1. මහ බැංකුව විසින් රජයේ සුරකුම්පත් මිලදී ගැනීම
2. විදුලි බිල් පත් ඉහළ යාම
3. සෘජු බදු වැඩි කිරීම
4. වක්‍ර බදු වැඩි කිරීම
5. ලෝක වෙළෙඳපොලෙහි ඛණිජ තෙල් මිල සීඝ්‍රයෙන් ඉහළ යාම

29)



දී ඇති රූප සටහන අනුව මූර්ත දළ දේශීය නිෂ්පාදිතය Y 2 සිටY 1 දක්වා අඩුවිය හැක්කේ,
1. ශුද්ධ අපනයන ධන අගයක් ගැනීම
2. මහා බැංකුව සුරකම් පත් මිලදීගැනීම
3. අඛණ්ඩව අයවැය හිඟයක් පවත්වා ගැනීම
4. අඛන්ඩව අයවැය අතිරික්තයක් පවත්වා ගැනීම
5. පරිලේඛන තොග ඉහළ යෑම

30) මහ බැංකුව විසින් ක්‍රියාවට නංවන මූල්‍ය ප්‍රතිපත්තිය සමාහාර ඉල්ලුමට බලපානුයේ,
1. කොටස් මිල ගණන් වෙනස් කිරීම මගිනි
2. පාරිභෝජන සහ ආයෝජන වියදම් වෙනස් කිරීම මගිනි
3. ආණ්ඩුවේ වියදම් වෙනස් කිරීම මගිනි
4. වක්‍ර බදු ආදායම් වෙනස් කිරීම මගිනි
5. අපනයන ඉල්ලුම වෙනස් කිරීම මගිනි

31) පරිභෝජනය සීමා කිරීමේ හැකියාව ඉතා ඉහළ නමුත්, පාරිභෝජනයේ තරහය ඉතා පහළ භාණ්ඩ පමණක් ඇතුළත් වරණය තෝරන්න.
1. ගංගා,වනාන්තර, පොදු තණ බිම් ,සාගර
2. ප්‍රදීපාගාර ඔරලෝසු කනු, ජාතික ආරක්ෂාව, වීදි ආලෝකකරණය
3. නිවස ,මෝටර් රථය, පෑන, ඇඳුම
4. පරිසරය සුරැකීම, පිරිසිදු වාතය ,දැනුම ,අධ්‍යාපනය
5. උද්‍යාන ,අධිවේගී මාර්ග, පිහිනුම් තටාක ,සිනමා ශාලා

Past Papers Wiki
SCAN AnyScanner

32) වෙළඳපොළ අසමත් වීම හටගනුයේ,
1. වෙළඳපොළ තුළ මිල යාන්ත්‍රණය මඟින් කාර්යක්ෂමව සම්පත් බෙදා වෙන් නොකරන විටදී.
2. ඒකක බද්දක් මඟින් අවගුණ භාණ්ඩ වල අධි පරිභෝජනය ඉවත් කරන විටදී
3. අත්‍යවශ්‍ය භාණ්ඩ මත රජය මිල පාලනයේ යෙදෙන විටදී
4. සියලුම භාණ්ඩ හා සේවා සඳහා වෙළඳපොළවල් නිර්මාණය වන විටදී
5. ආන්තික පිරිවැය, මිලට සමාන වී සම්පත් බෙදා හරින විටදී

33) ශ්‍රී ලංකා රජයේ ප්‍රාග්ධන ව්‍යාපෘතිවලින් ඇතුළත් සංරචක වනුයේ,
1. මූර්ත වත්කම් අත්පත් කර ගැනීමේ ප්‍රාග්ධන ව්‍යාපෘති,ප්‍රාග්ධන පැවරුම් සහ ඌන ව්‍යාපෘති ප්‍රතිපාදන
2. මූර්ත වත්කම් අත්පත් කර ගැනීමේ ප්‍රාග්ධන ව්‍යාපෘති,ස්ථාවර ප්‍රාග්ධනධන පාරිභෝජනය,ඌණ ව්‍යාපෘති ප්‍රතිපාදන
3. ප්‍රාග්ධන පැවරුම්,කුටුම්භ වෙත වර්තන පැවරුම් හා ශුද්ධ ණය
4. පොලී ගෙවීම් රාජ්‍ය සංස්ථා සඳහා වර්තන පැවරුම් හා ශුද්ධ ණය දීම්
5. මූල්‍ය වත්කම් අත්කර ගැනීම්, ප්‍රාග්ධන පැවරුම් හා ඌණ ව්‍යාපෘති ප්‍රතිපාදන

34) රජය විසින් පනවන බද්ධක බලපෑම් ප්‍රතික්‍රම වීමෙන්,
1. ධනවත් අයට වඩා දිළිඳු ජනකොටස් තම ආදායමෙන් අඩු ප්‍රතිශතයක් බදු වශයෙන් ගෙවති.
2. ධනවත් අයට වඩා දිළිඳු ජන කොටස් තම ආදායමෙන් වැඩි ප්‍රතිශතයක් බදු වශයෙන් ගෙවති.
3. ධනවත් අය හා සමාන බදු ප්‍රතිශතයක් දිළිඳු ජන කොටස් ගෙවති.
4. දිළිඳු ජන කොටස් තම ආදායමෙන් සමානුපාතිකව වෙනස් වන ප්‍රමාණයක් බදු වශයෙන් ගෙවති.
5. ධනවත් අය සෑම විටම දිළිඳු ජන කොටස් වලට වඩා වැඩියෙන් බදු ගෙවති.

35) ප්‍රාථමික අයවැය ශේෂය අගය කෙරෙන නිවැරදි සමීකරණය කුමක්ද?
1. ප්‍රාථමික අයවැය ශේෂය = මුළු රාජ්‍ය ලැබීම් - ණය වාරිකය හැර මුළු රාජ්‍ය ව්‍යයම
2. ප්‍රාථමික අයවැය ශේෂය = මුළු රාජ්‍ය ලැබීම් - රජයේ වර්තන ව්‍යයම
3. ප්‍රාථමික අයවැය ශේෂය = මුළු රාජ්‍ය ලැබීම් - මුළු රාජ්‍ය ව්‍යයම + ණය ආපසු ගෙවීම්
4. ප්‍රාථමික අයවැය ශේෂය = සමස්ථ අයවැය ශේෂය + රජයේ පොලී ගෙවීම්
5. ප්‍රාථමික අයවැය ශේෂය = සමස්ත අයවැය ශේෂය + ණය වාරික ආපසු ගෙවීම්

36) සාපේක්ෂ වාසි මූලධර්මයට අනුව,විශේෂීකරණයේ වාසි සහ හුවමාරුවේ වාසි ඉහළම අගයක් ගනුයේ,පහත සඳහන් කවර කරුණක් සැපිරීමෙන් රටවල් විසින් භාණ්ඩ නිෂ්පාදනය කරනු ලබන විටදීද?
1. නිරපේක්ෂවාසි ඉහළම අගයක් ගනු ලබන විටදී.
2. විනිමය අනුපාතය ක්ෂය වෙමින් පවතින විටදී.
3. වෙළඳ ශිෂ්‍රුමේ අතිරික්තයක් පවතිනන විටදී.
4. බාහිරතා ශූන්‍ය අගයකට ආසන්න වන විටදී.
5. අවස්ථික පිරිවැය පහළම අගයක් ගනු ලබන විටදී

37) ශ්‍රී ලංකාවේ විශාලතම ආනයන සැපයුම්කරු,
1. චීනය
2. එක්සත් අරාබි එමීර්
3. සිංගප්පූරුව
4. ඉන්දියාව
5. ඇමරිකා එක්සත් ජනපදය

38) කල්පිත ආර්ථිකයක 2024 වර්ෂයේ ගෙවුම් ශේෂයේ ජංගම ගිණුමට හා මූල්‍ය ගිණුමට අදාළ දත්ත කිහිපයක් පහත වගුව පෙන්නුම් කරයි(සියලු සංඛ්‍යා ඩොලර් බිලියන වලිනි)මෙම ආර්ථිකයේ ප්‍රාග්ධන ගිණුමේ ශේෂය කොපමණද?

අයිතමය	වටිනාකම
කළඹ ආයෝජන	60
වෙළෙඳ ශේෂය	- 220
සෘජු ආයෝජන	120
මූල්‍ය ව්‍යුත්පන්න	40
සේවා ගිණුමේ ශේෂය	-180
ශුද්ධ ප්‍රාථමික ආදායම	-60
වෙනත් ආයෝජන	30
සංචිත වත්කම්	50
ශුද්ධ ද්විතීක ආදායම	90

1. ඩොලර් බිලියන 300ක හිඟයකි
2. ඩොලර් බිලියන 370 ක අතිරික්තයකි
3. ඩොලර් බිලියන 70 ක අතිරික්තයකි
4. ඩොලර් බිලියන 70 ක හිඟයකි
5. ඩොලර් මිලියන 100 ක හිඟයකි

AnyScanner
අ.පො.ස උසස් පෙළ සියලුම විෂයන්ට අදාල ප්‍රශ්න පත්‍ර/පිළිතුරු පත්‍ර/සටහන් ලබා ගැනීමට Past Papers Wiki වෙත පිවිසෙන්න

39) තීරු බදු නොමැති තත්ත්වයක් යටතේ දේශීය කම්සයක් රුපියල් 6000ට අලෙවි කරන්නේ යයි සිතන්න.ඒ සඳහා රු.2000 ක් වටිනා ආනයනික අමුද්‍රව්‍ය භාවිතා කරයි.ආනයනික කම්සයක්ද මෙහිදී රු.6000 ට අලෙවි වන්නේ යයි සිතන්න.රජය ආනයනික කම්සයට 20% ක තීරු බද්දක් හා අමුද්‍රව්‍ය මත10% ක තීරු බද්දක් පැනවුවහොත් සඵල ආරක්ෂණ අනුපාතය කොපමණද?

1. 30% 2. 25% 3. 20% 4. 15% 5. 22.5%

40) රටක මූර්ත සඵල විනිමය අනුපාතිකය ඉහළ යන්නේ නම් ඉන් අදහස් වන්නේ,

1.රටේ උද්ධමන අනුපාතිකය සැලකිය යුතු ලෙස පහළ ගොස් ඇති බවයි.
2.විදේශ භාණ්ඩවලට සාපේක්ෂව එම රටේ අපනයන මිල වැඩිවී ඇති බවයි.
3.නාමික විනිමය අනුපාතය නොවෙනස්ව තිබියදී දේශීය මිල ගණන් පහළ ගොස් ඇති බවයි
4.උද්ධමනය නොවෙනස්ව තිබියදී එම රටේ නාමික විනිමය අනුපාතය පහළ ගොස් ඇති බවය.
5.වෙනත් ව්‍යවහාර ආහාර මුදල් ඒකක අඩංගු පැසකට සාපේක්ෂව එම රටේ ව්‍යවහාර මුදල් ඒකකයේ අගය අඩුවී ඇති
බවය.

41) මෙරට පුද්ගලයෙකු බංගලා දේශයේ ඇගලුම් කර්මාන්තයක් ආරම්භ කිරීම වාර්තා කරනුයේ ගෙවුම් ශේෂයේ කවර ගිණුමකද?

1. මූල්‍ය ගිණුමේ 2. ප්‍රාග්ධන ගිණුමේ 3. ප්‍රාථමික ආදායම් ගිණුමේ
4. ද්විතික ආදායම් ගිණුමේ 5. ජංගම ගිණුමේ

42) ආර්ථික සංවර්ධනය(Economic Development)යන්නෙන් අදහස් වනුයේ,

1. ආර්ථික වර්ධනයත් සමග සමග ව්‍යුහාත්මක හා ගුණාත්මක වෙනස්කම් සිදුවීමය.
2. ආර්ථික වර්ධනයක් සමගම සමගම අයවැය හා ගෙවුම් ශේෂ අතිරික්තයක් පැවතීමය.
3. දළ ජාතික ආදායම දිගු කාලීනව අඛණ්ඩව ඉහළ යාමය.
4. දරිද්‍රතාවය පහළ යාමත් සමගම ආදායම් ව්‍යාප්ති විෂමතා අවම වීමය.
5. ජනගහනයේ ජීවන තත්ත්වය උසස් වීමය.

43) නිරපේක්ෂ දරිද්‍රතා රේඛාව මඟින් පෙන්නුම් කරනුයේ ,

1. දරිද්‍රතාවයෙන් මිදීමට අවශ්‍ය මුදල් ප්‍රමාණයයි.
2. ජනගහනයේත් මැදි ආදායම් උපයන 10% හිමි කර ගත් සාමාන්‍ය මාසික ආදායමයි.
3. ජීවත්වීමට අවශ්‍ය වෙතැයි ඇස්තමේන්තු කළ අවම ආදායම් මට්ටමයි.
4. සමාජයේ අන්ත දරිද්‍රතා මට්ටමයි.
5. නාගරික ප්‍රදේශවල දිළිඳු ජනතාව හඳුනා ගැනෙන සීමාවයි.

44) ඒක පුද්ගල ප්‍රතිශීර්ෂ දළ ජාතික ආදායම(GNI)මත පදනම්ව,වර්තමාන ලෝක බැංකුව රටවල් වර්ගීකරණයේදී ඉහළ මැදි ආදායම් කාණ්ඩය ලෙස සැලකෙන්නේ,

1. ඇමරිකා එක්සත් ජනපදයේ ඩොලර් 1136 < 4495 2. ඇමරිකා එක්සත් ජනපදයේ ඩොලර් 4496 < 13935
3. ඇමරිකා එක්සත් ජනපදයේ ඩොලර් 4425 < 12650 4. ඇමරිකා එක්සත් ජනපදයේ ඩොලර් 4475< 13125
5. ඇමරිකා එක්සත් ජනපදයේ ඩොලර් 4000< 12500

45) පහත සඳහන් ඒවා අතරින් කවරක් මැනීමට ලොරන්ස් වක්‍රය යොදා ගන්නේද?

1. විවිධ රටවල පොදු භාණ්ඩ හා සුභ සාධන භාණ්ඩ අතර අනුපාතය මැනීමට
2. කිසියම් රටක ඉහළම ආදායම් ලබන ප්‍රතිශතය සහ පහළම ආදායම් ලබන ප්‍රතිශතය අතර අනුපාතය
3. ශ්‍රම බලකායෙන් සේවා නියුක්ති ජනගහනය හා සේවා වියුක්ති ජනගහනය අතර අනුපාතය
4. විවිධ රටවල ධනය සහ ආදායම් අතර අනුපාතය
5. විවිධ රටවල ආදායම් අසාමානතාවය සහ ආදායම් අසාමානතාවය අතර අනුපාතය

46) තාක්ෂණික දියුණුව නිසා හෝ භාණ්ඩ හා සේවා ඉල්ලුමෙහි හටගන්නා වෙනස් වීම් නිසා හටගන්නා සේවා වියුක්තිය,

1. සාර්ෂික සේවා වියුක්තිය වේ. 2. චාරික සේවා වියුක්තිය වේ 3. සැඟවුණු සේවා වියුක්තිය වේ
4. ව්‍යුහාත්මක සේවා වියුක්තිය වේ 5. අනිච්ඡානුගත සේවා වියුක්තිය වේ.

47) 2023 වර්ෂයේ ශ්‍රම බලකා සහභාගිත්ව අනුපාතිකය සහ සේවා විශුක්ති අනුපාතිකය නිවැරදිව දැක්වෙන වරණය වන්නේ?

1. 47.4% හා 4.4%
2. 49.8% හා 4.7%
3. 49.9 හා 5.1%
4. 50.6% හා 5.5%
5. 48.6% හා 4.7%

48) මානව සංවර්ධන දර්ශකය(HDI)යොදා ගන්නේ,විවිධ රටවල සංවර්ධන මට්ටම් තක්සේරු කිරීම හා සංසන්දනය කිරීම සඳහාය.මෙම දර්ශකය ප්‍රකාශයට පත් කරන ජාත්‍යන්තර සංවිධානය කුමක්ද?

1. එක්සත් ජාතීන්ගේ මානව සංවර්ධන වැඩසටහන
2. ලෝක බැංකුව
3. ආසියානු සංවර්ධන බැංකුව
4. ජාත්‍යන්තර මූල්‍ය අරමුදල
5. ලෝක වෙළෙඳ සංවිධානය

9

49) 2023 වර්ෂයේ ශ්‍රී ලංකාවේ දළ දේශීය නිෂ්පාදිතයේ ආංශික සංයුතිය නිවැරදිව දැක්වෙනුයේ කුමන කාණ්ඩය මගින්ද?

	කෘෂිකර්මය , වන වගාව හා ධීවර (%)	කර්මාන්ත (%)	සේවා (%)
1.	7.5	26.7	59.2
2.	7.8	25.3	60.7
3.	7.0	24.6	60.4
4.	7.6	25.8	60.4
5.	7.0	26.1	58.8

50) වර්තමානයේ ජාත්‍යන්තර මූල්‍ය අරමුදල ලංකාව වෙනුවෙන් ක්‍රියාවට නංවන විස්තීර්ණ අරමුදල් පහසුකමේ මූලිකම ඉලක්කය වන්නේ,

1. ශ්‍රී ලංකාව මැදි ආදායම් යම් කාණ්ඩයෙන් ඉහළ ආදායම් කාණ්ඩය දක්වා වෙනස් කිරීම
2. ශ්‍රී ලංකාවේ විනිමය අනුපාතය ස්ථායිකරණය
3. මැදි කාලීනව රටේ උද්ධමන අනුපාතිකය තනි ඉලක්කමකට රැගෙන ඒම
4. රාජ්‍ය ව්‍යවසායන් ප්‍රතිව්‍යුහගතකරණය
5. රටේ සාර්ව ආර්ථික පරිසරය ස්ථායිකරණය සහ රාජ්‍ය ණය තිරසර භාවය ඇතිකිරීම

***

AnyScanner
අ.පො.ස උසස් පෙළ සියලුම විෂයන්ට අදාල ප්‍රශ්න පත්‍ර/පිළිතුරු පත්‍ර/සටහන් ලබා ගැනීමට Past Papers Wiki වෙත පිවිසෙන්න

සියලු ම හිමිකම් ඇවිරිණි/ முழுப் பதிப்புரிமையுடையது/ All Rights Reserved

මධ්‍යම පළාත් අධ්‍යාපන දෙපාර්තමේන්තුව
மத்திய மாகாண கல்வித் திணைக்களம்
DEPARTMENT OF EDUCATION CENTRAL PROVINCE

අ.පොස (උ.පෙළ) පෙරහුරු පරීක්ෂණය - 2025

ආර්ථික විද්‍යාව II	21	S	II	13 ශ්‍රේණිය	පැය තුනයි

උපදෙස්:

අමතර කියවීම් කාලය - මිනිත්තු 10

* සියලු ම ප්‍රශ්නවලට පිළිතුරු සපයන්න .
* උත්තර පත්‍රයේ නියමිත ස්ථානයේ ඔබේ විභාග අංකය ලියන්න.
* උත්තර පත්‍රයේ දී ඇති උපදෙස් ද සැලකිල්ලෙන් කියවා පිළිපදින්න.
* 'අ' උප කොටසෙන් අවම වශයෙන් ප්‍රශ්න දෙකක්ද 'ආ' උප කොටසෙන් අවම වශයෙන් ප්‍රශ්න දෙකක්ද ඇතුලත් වන සේ ප්‍රශ්න පහකට පමණක් පිළිතුරු ලියන්න.

"අ" උප කොටස

1)

I. "සම්පත් අසීමිතව සහ නොමිලේ ලබා ගැනීමට ඇත්නම්,ආර්ථිකයකට තේරීම් කිරීමට සිදු නොවේ"මෙම ප්‍රකාශය පැහැදිළි කරන්න (ලකුණු 04)

II. ප්‍රතිෂ්ඨාපනය කළ නොහැකි සම්පත් යනුවෙන් අදහස් කරන්නේ කවරක්ද? එවැනි සම්පත් වලට උදාහරණ 02 ක් දක්වන්න. (ලකුණු 04)

III. (අ)නිෂ්පාදන හැකියා වක්‍රය මූලයට අවතල විය හැක්කේ කවර කොන්දේසි යටතේද? (ලකුණු 03)
(ආ)පහත දැක්වෙන සිදුවීම් නිෂ්පාදන හැකියා මායිම් වක්‍ර මගින් පෙන්නුම් කළ හැක්කේ කෙසේදැයි වෙන වෙනම රූප සටහන් යොදා ගනිමින් කෙටියෙන් විස්තර කරන්න. (ලකුණු 03)
(A)ජාත්‍යන්තර යුධමය තත්ත්වයන් හේතුවෙන් අන්තර් භාණ්ඩ සැපයුම් දිගු කාලීනව පහළ යෑම
(B)සෞඛ්‍ය සේවාවල ගුණාත්මක තත්ත්වය ඉහළ යෑමෙන් මානව ප්‍රාග්ධනය ශක්තිමත් වීම
(C)රජය ආරක්ෂක වියදම් අඩු කරමින්,අධ්‍යාපන වියදම් ඉහල නැංවීම

IV. ."මිල යාන්ත්‍රණය ඔස්සේ ක්‍රියාත්මක වන වෙළඳපොළ ආර්ථික පද්ධතියක් සෑම විටම සමත් වේ නම් වෙළඳපොළ ක්‍රියාකාරීත්වයට රජයේ මැදිහත්වීම අවශ්‍යම නොවේ"එකඟ වන්නේද?පහදන්න(ලකුණු 06)

2)

I. භාණ්ඩයක හෝ සේවාවක පෞද්ගලික ඉල්ලුම තීරණය කෙරෙන සාධක නම් කරන්න (ලකුණු 05)

II. ඉල්ලුම් වක්‍රයක් සෘණ බෑවුමක් සහිත වීමට හේතු සැකෙවින් විස්තර කරන්න (ලකුණු 04)

III. සැපයුමේ මිල නම්‍යතාවය නිෂ්පාදන අතිරික්තයට බලපානු ලබන්නේ කෙසේදැයි රූප සටහනක් ඇසුරින් පහදන්න. (ලකුණු 05)

IV. තරගකාරී බිත්තර වෙළඳපොලක් සඳහා ඉල්ලුම් හා සැපයුම් සමීකරණ පහත දැක්වේ
ඉල්ලුම් සමීකරණය $Qd = 50 - p$
සැපයුම් සමීකරණය $Qs = -10 + 2p$
(අ)බිත්තර වෙළඳ පොළෙහි සමතුලිත මිල හා ප්‍රමාණය කොපමණද? (ලකුණු 02)
(ආ)පාරිභෝගිකයන්ට බිත්තර සම්පූර්ණයෙන්ම නොමිලේ ලැබුණහොත් පාරිභෝගික අතිරික්තය කෙසේ වෙනස් වේද? (ලකුණු 02)
(ඇ)සමතුලිත මිල රු10න් ඉහළ ගියහොත් ඉල්ලුම් නම්‍යතාවය අගය කරන්න (ලකුණු 02)

SCAN AnyScanner

3)

I. ගොවිපළ නිෂ්පාදන සඳහා මිල ස්ථායිකරණයක් අවශ්‍ය වන්නේ ඇයි? (ලකුණු 06)
ගොවිපළ නිෂ්පාදනවල මිල ස්ථායිකරණ ක්‍රියාමාර්ග දක්වන්න

II. උපරිම මිලක් පාරිභෝගිකයාට වාසි සලසන්නේ නම් උපරිම මිල ආර්ථික අතිරික්තය අඩු කරන්නේ ඇයි?රූප සටහනක් මගින් ඔබේ පිළිතුර පැහැදිළි කරන්න (ලකුණු 04)

III. තරගකාරී පොල් වෙළෙඳපොළක ඉල්ලුම් හා සැපයුම් සමීකරණ පහත දැක්වේ
Qd = 120 -p
Qs = 2p
(අ)පොල් ගෙඩියක් සඳහා රජය රු.30 ක උපරිම මිලක් පනවන්නේ යැයි සිතන්න
(a)උපරිම මිලෙන් පසු පැන නගින අධි ඉල්ලුම කොපමණද? (ලකුණු 02)
(b)උපරිම මිලෙන් පසු කළුකඩ මිල අගය කරන්න (ලකුණු 02)
(ආ)පොල් සඳහා උපරිම මිල පැනවීමක් වෙනුවට,රුපියල් 50ක අවම සහතික මිලක් පනවා ඌන පූර්ණ ගෙවීම් ක්‍රමයක් ක්‍රියාත්මක කරයි නම්,
(a)සහතික මිලෙන් පසු වෙළඳපොළ මිල කීයද? (ලකුණු 02)
(b)ඌන පූර්ණ ගෙවීම සඳහා රජයේ පිරිවැය කොපමණද? (ලකුණු 02)
(c)ඌන පූර්ණ ගෙවීමේ සමාජ සුභසාධක හානිය කොපමණද? (ලකුණු 02)

4)

I. නිෂ්පාදන ක්‍රියාවලියේ දිගු කාලය,කෙටි කාලයෙන් වෙනස් වන්නේ කෙසේද? (ලකුණු 04)

II. ඒකාධිකාරී වෙළඳපොළක ප්‍රධාන ලක්ෂණ හතරක් දක්වන්න (ලකුණු 04)

III. පූර්ණ තරහකාරී ආයතනයක් තම නිමැවුම ඒකකයක් රුපියල් 150 වෙළඳපොළ මිලක් යටතේ අලෙවි කරන අතර ඒකක 80 ක් නිෂ්පාදනය කරයි.ආයතනයේ සාමාන්‍ය විචල්‍ය පිරිවැය රු.90 ක් හා සාමාන්‍ය ස්ථාවර පිරිවැය රු 40 කි.
(අ)මෙම නිමැවුම් මට්ටමේදී ආයතනයේ මුළු අයභාරය මුළු පිරිවැය ලාභය හෝ අලාභය අගය කරන්න (ලකුණු 03)
(ආ)මෙම නිමවුම් මට්ටමේදී නිෂ්පාදන අත්තරික්තය ගණනය කරන්න (ලකුණු 02)

IV. පූර්ණ තරහකාරී වට්ටක්කා වෙළඳපොළක් උපකල්පනය කරන්න. වෙළෙඳපොළ තුළ සිටින නිෂ්පාදන ආයතනයක් නිෂ්පාදනයේ නිරතව සිටින්නේ ආර්ථික ලාභ ලබමිනි.
(අ)මෙම තත්ත්වයට අදාළ වෙළඳපොළ,ආයතනයේ සාමාන්‍ය මුළු පිරිවැය(ATC)සාමාන්‍ය විචල්‍ය පිරිවැය(AVC)සහ ආන්තික පිරිවැය(MC)සමග සංසන්දනය කරන්න (ලකුණු 03)
(ආ)ලාභ තත්ත්වය යටතේ නව ආයතන වෙළෙඳ පොළට ප්‍රවේශ වීම නිසා වෙළඳපොළ මිල පහළ යෑමෙන් ආයතනය අලාභ ලබයි නම්,එම තත්ත්වය රූප සටහනකින් දක්වන්න. (ලකුණු 04)

5)

I. මූලික මිල, නිෂ්පාදකයාගේ මිල , ගැනුම්කරුගේ මිල අතර වෙනස දක්වන්න (ලකුණු 03)

II. පහත සඳහන් සිදුවීම් දළ දේශීය නිෂ්පාදිතයට බලපාන්නේ කෙසේද? පැහැදිලි කරන්න (ලකුණු 04)
(අ)වසරකට වඩා වැඩි කාලයක් විදේශගත ශ්‍රමිකයන් රුපියල් මිලියන 500 ක් තම යැපෙන්නන්ට එවීම
(ආ)බලපත්‍ර නොමැතිව රුපියල් මිලියන 100 ක් වටිනා මත්පැන් නිෂ්පාදනය
(ඉ)පාවිච්චි කළ භාණ්ඩ නැවත විකිණීමකදී තැරැව්කාර ගාස්තු වශයෙන් රුපියල් 50000 ක් ගෙවීම
(ඊ)ගුවන් විදුලි ශ්‍රාවකයන්ට නොමිලේ ඇසීමට සලස්වන ගීත වෙනුවෙන් ගුවන් විදුලි ආයතනය රුපියල් මිලියන 5 ක කර්තෘ හිමිකම් ගෙවීම

III. දළ දේශීය ප්‍රාග්ධන සම්පාදනයට අයත් සංරචක දක්වන්න (ලකුණු 03)

AnyScanner
අ.පො.ස උසස් පෙළ සියලුම විෂයන්ට අදාල ප්‍රශ්න පත්‍ර/පිළිතුරු පත්‍ර/සටහන් ලබා ගැනීමට Past Papers Wiki වෙත පිවිසෙන්න

Past Papers Wiki

IV. කිසියම් කල්පිත ආර්ථිකයක් සඳහා පහත දැක්වෙන සාර්ව ආර්ථික දත්ත සැලකිල්ලට ගන්න(සියලු සංඛ්‍යා රුපියල් මිලියන වලිනි)

පාරිභෝජනය(C)	=300+0.8 yd	සංක්‍රාම (Tr)	=120
ආයෝජනය(I)	=250	ශුද්ධ අපනයන (Nx)=-50	
රාජ්‍ය වියදම්(G)	=200		
ස්වාධීන බදු(T)	=100		

(අ) මෙම ආර්ථිකය සඳහා සමතුලිත ජාතික ආදායම් මට්ටම කොපමණද? (ලකුණු 04)

(ආ)සමතුලිතයේදී පරිභෝජනය හා ඉතුරුම් ගනනය කරන්න. (ලකුණු 02)

(ඉ) සමතුලිත ජාතික ආදායම රු.මිලියන 5000 දක්වා වැඩි කිරීමට, රාජ්‍ය වියදම් කොපමණ වෙනස් කල යුතු වේද? (ලකුණු 04)

"ආ" කොටස

6)

I. මුදල් ඉල්ලුම යනු කුමක්ද?මුදලට ඇති ඉල්ලුමේ ප්‍රධාන නිශ්චායක කවරේ ද? (ලකුණු 05)

II. මුදල් ප්‍රමාණවාදය සැකෙවින් පහදන්න (ලකුණු 04)

III. ශ්‍රී ලංකා මහ බැංකුවේ ප්‍රධාන කාර්යයන් 04 ක් දක්වන්න. (ලකුණු 04)

IV. එක්තරා ආර්ථිකයක පටු මුදල් සැපයුම රුපියල් මිලියන 6000 කි.එයින් රුපියල් මිලියන 1000ක් ව්‍යවහාර මුදල් වේ.මෙම ආර්ථිකයේ වාණිජ බැංකු පද්ධතිය සතු අධි සංචිත රුපියල් මිලියන 2000කි.සංචිත අනුපාතය 10%කි.අනෙකුත් වත්කම් ණය වේ.

(අ) මෙම ආර්ථිකයේ අධිබල මුදල් ප්‍රමාණය කොපමණද? (ලකුණු 02)

(ආ) බැංකු පද්ධතියේ ශේෂ පත්‍රය දක්වන්න (ලකුණු 02)

(ඉ) අධි සංචිත ණයට දෙන්නේ නම් ණයදීමෙන් පසු මුදල් සැපයුම කොපමණද? (ලකුණු 03)

7)

I. අර්ධ පොදු භාණ්ඩ, ශුද්ධ පොදු භාණ්ඩ වලින් වෙනස් වන්නේ කෙසේද? (ලකුණු 04)

II. නිදහස් වෙළඳපොළක් තුළ සෘණ බාහිරතා සහිත භාණ්ඩයක් අධි නිෂ්පාදනයකට යොමු වන්නේ ඇයි?රූප සටහනක් යොදා ගනිමින් ඔබේ පිළිතුර පැහැදිලි කරන්න. (ලකුණු 04)

III. "විසර්ජන පනත"සහ "අතුරු සම්මත ගිණුම"අතර වෙනස දක්වන්න (ලකුණු 04)

IV. අයවැය හිඟය මූල්‍යනය කිරීමේ උද්ධමනාත්මක හා උද්ධමනාත්මක නොවන මූලාශ්‍ර වෙන්කොට දක්වන්න. (ලකුණු 04)

V. අයවැය ලේඛනය හා සම්බන්ධ පහත සංකල්ප ගණනය කරන ආකාරය දක්වන්න. (ලකුණු 04)

(අ) වර්තන ගිණුමේ ශේෂය

(ආ) ප්‍රාථමික ගිණුමේ ශේෂය

(ඉ) සමස්ත ශේෂය

(ඊ) ශුද්ධ මූල්‍යය හිඟය

8)

I. විදේශ වෙළඳාම පදනම් වන " නිරපේක්ෂ වාසිය" හා "සාපේක්ෂ වාසිය" යන සංකල්ප අතර වෙනස දක්වන්න (ලකුණු 04)

II. විනිමය අනුපාතිකයේ ක්ෂයවීමක් රටක වෙළඳ ශේෂයට වාසිදායක බලපෑම් ඇති කිරීමට නම් සම්පූර්ණ විය යුතු කොන්දේසි මොනවාද? (ලකුණු 04)

SCAN AnyScanner

III. කිසියම් කල්පිත ආර්ථිකයක ගෙවුම් ශේෂ ගනුදෙනුවල සාරාංශයක් පහත වගුවෙන් ඉදිරිපත් කෙරේ(සියලු සංඛ්‍යා රුපියල් බිලියන වලිනි)

අයිතමය	වටිනාකම	අයිතමය	වටිනාකම
භාණ්ඩ අපනයන	1000	ශුද්ධ සෘජු ආයෝජන	160
භාණ්ඩ ආනයන	1200	ශුද්ධ ආයෝජන	180
ප්‍රාථමික ආදායම් ලැබීම්	500	ශුද්ධ වෙනත් ආයෝජන	20
ප්‍රාථමිකආදායම් ගෙවීම්	300	සංචිත වත්කම්	90
සේවා ශුද්ධ	100	ශුද්ධ ප්‍රාග්ධන සංග්‍රාම	2000
ශුද්ධ ද්විතියක ආදායම්	150		

පහත දැ ගණනය කරන්න

(අ) වෙළෙඳ ශේෂය (ලකුණු 02)

(ආ) ශුද්ධ අපනයන (ලකුණු 02)

(ඉ) ජංගම ගිණුමේ ශේෂය (ලකුණු 02)

(ඊ) මූල්‍ය ගිණුමේ ශේෂය (ලකුණු 02)

IV. පසුගිය වසර කිහිපය සමඟ සසඳන විට වර්තමානය වන විට ඇමෙරිකානු ඩොලරයට සාපේක්ෂව ශ්‍රී ලංකා රුපියල ශක්තිමත් වෙමින් පවතී.රුපියල ශක්තිමත් වීමක ප්‍රතිවිපාක ඔබ හඳුනාගන්නේ කෙසේද? (ලකුණු 04)

9)

I. ආර්ථික වෘද්ධිය යනු කුමක්ද?ආර්ථික වෘද්ධියේ මූලාශ්‍ර දක්වන්න. (ලකුණු 05)

II. එක්සත් ජාතීන්ගේ මානව සංවර්ධන දර්ශකය (HDI) පදනම් කරගනිමින් රටවල් කාණ්ඩ හතරකට වර්ගීකරණය කරයි.එම කාණ්ඩ හතර කවරේද? (ලකුණු 04)

III. ජනගහන දරිද්‍රතා දර්ශකය හා දරිද්‍රතා අන්තර් දර්ශකය අතර වෙනස කුමක්ද? (ලකුණු 04)

IV. (අ)ශ්‍රී ලංකාවේ ක්‍රියාත්මක වන සමාජ ආරක්ෂණ ජාල වැඩසටහන් නම් කරන්න. (ලකුණු 03)

(ආ)එම සමාජ ආරක්ෂණ වැඩසටහන් වල දක්නට ඇති අඩුපාඩු කවරේදැයි දක්වන්න. (ලකුණු 04)

10)

I. නිදහසින් පසු ශ්‍රී ලංකා ආර්ථිකයේ ඌණ සාධනයට හේතු ඔබ හඳුනාගන්නේ කෙසේද? (ලකුණු 05)

II. තාක්ෂණික ප්‍රගතියේ මන්දගාමී බව සංවර්ධන ක්‍රියාවලිය පසුගාමී වීමට හේතු වන්නේ කෙසේදැයි විස්තර කරන්න. (ලකුණු 05)

III. 2025 වසරේදී මිලියන 3 ඉක්මවූ සංචාරකයින් ආකර්ෂණය කර ගැනීමේදී ශ්‍රී ලංකාව මුහුණ දෙන අභියෝග කවරේද? (ලකුණු 05)

IV. දූෂණය පිටු දැකීම සහ විශ්වසනීය ආණ්ඩුකරණය ආර්ථික සංවර්ධන ක්‍රියාවලියට බලපාන්නේ කෙසේද? (ලකුණු 05)

***

AnyScanner
අ.පො.ස උසස් පෙළ සියලුම විෂයන්ට අදාල ප්‍රශ්න පත්‍ර/පිළිතුරු පත්‍ර/සටහන් ලබා ගැනීමට Past Papers Wiki වෙත පිවිසෙන්න

ඩී.ඔෙ.ස (උ.ඔෙළ) ඔෙවිසූරු පරීක්ෂණය - 2025

13 ශ්‍රේණිය - ජාර්මික විද්‍යාව

පිළිතුරු

1) – 3	11) – 3	21) – 3	31) – 5	41) – 1
2) – 5	12) – 1	22) – 5	32) – 1	42) – 1
3) – 2	13) – 1	23) – 4	33) – 1	43) – 3
4) – 5	14) – 2	24) – 1	34) – 2	44) – 2
5) – 1	15) – 3	25) – 2	35) – 4	45) – 5
6) – 2	16) – 5	26) – 4	36) – 5	46) – 4
7) – 3	17) – 4	27) – 3	37) – 4	47) – 5
8) – 1	18) – 1	28) – 1	38) – 3	48) – 1
9) – 4	19) – 2	29) – 4	39) – 2	49) – 2
10) – 4	20) – 3	30) – 2	40) – 2	50) – 5

SCAN AnyScanner

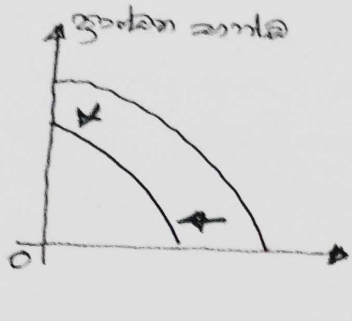
(01) I
- ඕනෑම අර්ථ නිරූපණය කෙරීම කිරීමට වලංගු සාධක 02 කි.
  1. සන්දර්භය හඳුනාගත
  2. නිවැරදි සංවේදී බලපෑම් දැනගත්ත තුළින් (ලකු 01)
- සෙවන් නිරූපණ තමා යම්කිසි සිදුවීම හා සම්බන්ධ වූ පුද්ගලයෙකුට කියන්නට හැකි වීම. (ලකු 01)
- සම්මත අර්ථවිවරණයේ, නොවිලංගුවේ ලක්ෂණාර්ථය අවශ්‍යතාවයෙන් අඩු නොවේ. නිවැරදි පුද්ගලයෙකුට කියනවා සාක්ෂිය නේ හෝ යෙදෙන්නේ නම් සැක කරමින් විමර්ශනය කළ හැකිය. (ලකු 02)

II - ස්වභාවික කුියාවලියේ හෝ මිනිස් ඇඳිරාවීම් හෝ වශයෙන් කාලයක් සමග ස්වභාවික ක්‍රියාදාමය නොවන හෝ ප්‍රතිසංස්කරණය නොවන ස්වභාවික සම්පත් ප්‍රතිනිර්මාණය කළ නොහැක්ක සම්පත් ලෙස හැඳින්වේ. (ලකු 02)
- සාමාන්‍යයට ගැනීම නිසා සාපේක්ෂකාලීන කළය වීමට හේතු වන බැවින් මෙම සම්පත් අක්ෂීය / කිරිසෙර් නොවන සම්පත් ලෙස සැලකේ. (ලකු 01)
- උදා - ගල් අඟුරු, පෙට්‍රෝලියම්, ඔක්සිජන් සම්පත (ලකු 01)

III (අ) - සම්පත් ප්‍රමාණාත්මක නොවීම - සාක්ෂිය දෙවර්ගයම නිගමනය කිරීම සඳහා යොදාගන්නා සම්පත් එක හා සමාන කාර්යක්ෂමතාවයකින් යුක්ත නොවීම. එවිට එක් සාක්ෂියක සිට අනෙක් සාක්ෂියක් කරා සම්පත් මාරු කිරීමේදී අතිරේක පිරිවැයක් ඇති වීමක් සිදුවේ. (ලකු 01)
- සම්පත් සමමාත්‍රික නොවීම - සාක්ෂි දෙකෙහිම නිගමනයට යොදාගන්නා සම්පත් ඵලදායීතාවය, ප්‍රතිචාරාත්මකතාවය සහ කුසලතා යන කරුණු වලින් සමාන නොවන විට, නිගමනය එක් සාක්ෂියකින් අනෙක් සාක්ෂියට මාරුවන විට අතිරේක පිරිවැය කුමයෙන් වැඩිවේ. (ලකු 01)
- වැඩෙන අන්‍යෝන්‍ය පිරිවැය - එක් සාක්ෂියක අතිරේක ඒකකයක් සඳහා අනෙක් සාක්ෂියෙන් කැපකරනු ලබන ප්‍රමාණය කුමයෙන් වැඩිවීම (ලකු 01)

AnyScanner
අ.පො.ස උසස් පෙළ සියලුම විෂයන්ට අදාල ප්‍රශ්න පත්‍ර/පිළිතුරු පත්‍ර/සටහන් ලබා ගැනීමට Past Papers Wiki වෙත පිවිසෙන්න


(අ) (A)



(ලකු 01)

- අත්කර්ගනාබ පළමුවන දිගුකාලීනව නතර යන බව නිර්නාමික වාක්‍යයෙන් පුනුපු කිරීමෙන් හෝ වෙනම වාක්‍යයක් ලෙස ලිවීම වඩාත් වේ.

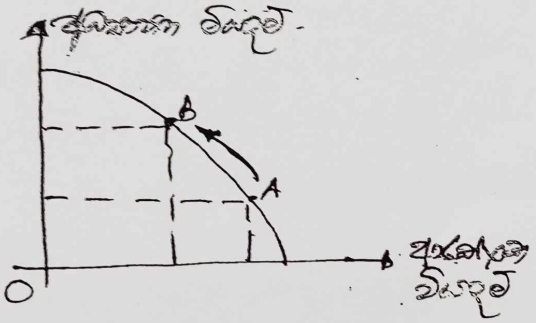
(B)



(ලකු 01)

- මෙහි ඉල්ලුම් සටහන ගෙන්වීම් වීම, ඒවායේ ඵලදායිතාවය ඉහළ යාමක් නිසා නිර්නාමික වාක්‍යයෙන් වැඩිවීම් වාක්‍යයක් ලෙස වෙනම ලියයුතුය. ඉල්ලුම් සටහන ගෙන්වීම් වීම, ඒවායේ ඵලදායිතාවය ඉහළ යාමක් නිසා නිර්නාමික වාක්‍යයෙන් වැඩිවීම් වාක්‍යයක් ලෙස වෙනම ලියයුතුය.

(C) අවශ්‍යතා වියදම්



ඒ-3

IV සමාජ ගොවේ

- මිල යාන්ත්‍රණය ඔස්සේ ක්‍රියාත්මක වන මෙදුනෙද ආර්ථිකයක සාධනීය (ධනාත්මක) ලක්ෂණ හඳුනාගත හැකිය.
  - තරඟකාරී පරිසරය පවතින බව
  - සාපේක්ෂ පුනර්ජීවී බව
  - පේරිටෝ කාර්යක්ෂමතාව
  - ගණන් හිලීම්කරණය ඉහළ මට්ටමක පැවතීම.
  - මෙහෙයවීම් සඳහා සංඥාවෝ නිවැරදිවේ පවතින බව.
- මෙහෙන් සාධනීය ලක්ෂණ කිහිපයක් මෙම මෙදුනෙද ආර්ථිකයෙන් පැහැදිලි වන බව පැහැදිලි කිරීම ලකුණු ගණනේ. එහෙත් අතිරේක තවත් ලක්ෂණ කිහිපයක් ඇතුළත් කිරීමෙන් අතිරේක ලකුණු ලබා ගත හැකිය.

කෘෂිකාර්මික කටයුතු සඳහා ජලය භාවිතා කිරීමේ අවාසි වේ.
- ජලජීවී කෙඳිරෝගවල හානිකාරකත්වයන් ඇති කිරීම
- ජාත්‍යන්තර වෙළඳාමේ බාධාවන් ඇතිකිරීම.
- ඛාදනය කාලීනය
- කෙටි කාලීන හා දිගුකාලීන හානිය සැලසීම
(ලකුණු 06)

(2) I - සැලසුම් කළ හානිසාධක (P) - භූගෝලීය අවිනිශ්චිතතා (T)
- සම්භාව්‍ය හානි වර්ග (Ph) - අනාගත අපේක්ෂා (Ex)
- භූගෝලීය අවදානම (T) - මානව සාධක (O) (ලකුණු 05)

II - ආදේශක ඉල්ලුම් නීතිය

අනෙකුත් සාධක සියල්ල නියත කිරීමෙන් පසු ඉල්ලුම් කරන භාණ්ඩයේ මිල ඉහළ යාමේ ප්‍රතිඵලයක් ලෙස වෙනත් භාණ්ඩ මිල නොවෙනස්ව තිබියදී ඉල්ලුම් කරන ප්‍රමාණය අඩුවීම ආදේශක ඉල්ලුම් නීතිය වේ.

- ආදායම් ඉල්ලුම් නීතිය

අනෙකුත් සාධක සියල්ල නියත කිරීමෙන් පසු පුද්ගලයාගේ ආදායම වෙනස් වීමේ ප්‍රතිඵලයක් ලෙස භාණ්ඩයක් මිල නොවෙනස්ව තිබියදී ඉල්ලුම් කරන ප්‍රමාණය වෙනස් වීම ආදායම් ඉල්ලුම් නීතිය වේ.

- ඒ අනුව මිල වැඩිවන විට ඉල්ලුම් කරන ප්‍රමාණය අඩුවන්නා සුළු , මිල අඩුවන විට ඉල්ලුම් කරන ප්‍රමාණය වැඩි කිරීමෙන් ඉල්ලුම් වක්‍රයක් ලබේ. සිව දැකුණා බැවුම් වීමෙන්, සෘණ බැවුමක් පැහැදිය වේ. (ලකුණු 04)

III - සැලසුම් කළ ආගමය - අපේක්ෂා කළ ප්‍රතිඵලය අත්කරගනී.
- සාමාන්‍ය ආගමය - අපේක්ෂා කළ ප්‍රතිඵලය සාමාන්‍යයෙන් ලබාගනී.
- සාමාන්‍ය නගමය - අපේක්ෂා කළ ප්‍රතිඵලය සාමාන්‍යයට අඩු වේ.
- සාමාන්‍ය අඩාල නගමය - අපේක්ෂා කළ ප්‍රතිඵලය ඉතා අඩු වේ.

(නිවැරදි නියම සඳහන් කළ විස්තර ලකුණු ලබා දෙන්න.)
(ලකුණු 05)

AnyScanner
අ.පො.ස උසස් පෙළ සියලුම විෂයන්ට අදාල ප්‍රශ්න පත්‍ර/පිළිතුරු පත්‍ර/සටහන් ලබා ගැනීමට Past Papers Wiki වෙත පිවිසෙන්න

IV

(i) $Q_d = Q_s$

$50 - P = -10 + 2P$

$60 = 3P$

$20 = P$

$Q_d = 50 - P$

$Q_d = 50 - 20$

$Q_d = 30$

සමතුලිත මිල රු. 20

සමතුලිත ප්‍රමාණය = ඒකක 30 (ලකු 02)

(ii) සමතුලිත

මිල යටතේ කලි. අති. = $\frac{30 \times (50-20)}{2}$

$= \frac{30 \times 30^{15}}{2}$

$= 450$

නොමිලේ ලබාගන්නොත් කලි. අති. = $\frac{50 \times 50^{25}}{2}$

$= 1250$

සමාජයීය ශුද්ධ ප්‍රතිලාභය වෙනස = නොමිලේ ලබාගන්නොත් කලි. අති. − සමතුලිත මිල යටතේ කලි. අති.

$= 1250 - 450$

$= 800$ (ලකු 02)

(iii) $PED = b \times \frac{P}{Q_d}$

$= -1 \times \frac{2^1}{2^1}$

$= -1.05$ (ලකු. 02)

(9) I - ඒකාධිකාරීමය තත්ත්ව වලදී මිල උච්චාවචනයන් පවතින්නා සේම, පොදිගත් ආදායම් අස්ථායී වේ. පොදිගත් ආදායම් ස්ථායීකරණයක් ඇති කිරීමට නම් ඒකාධිකාරී තත්ත්ව වලදී මිල ස්ථායීකරණය වැදගත්වේ. ඒකාධිකාරී තත්ත්ව වලදී මිල අස්ථායීභාවයට හේතු කිහිපයක්.

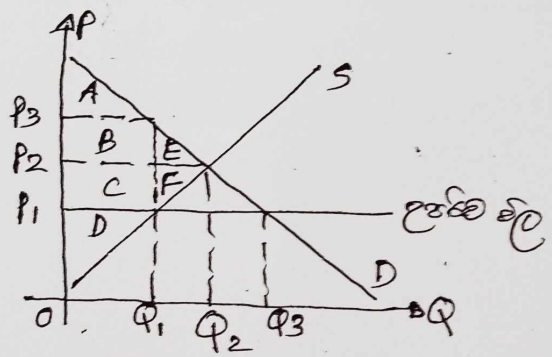
- ඒකාධිකාරී තත්ත්ව යටතේ ඉල්ලුම හා සැපයුම් අනමාරු වීම.
- කාලානුක්‍රමික හා ප්‍රාදේශීය වෙනස්කම්
- ඒකාධිකාරී වියරුවන
- පරිපාලන කටයුතු. (ලකු 03)

- වෙනත් තත්ත්වයන් තත්ත්වාරූඪ වලදී මිල ස්ථායීභාවයක් ඇතත්, සමහර වලදීත් මිල ස්ථායීකරණයක් ඇතිකිරීම සඳහා පහත සඳහන් කරුණු අනුගමනය කළ හැකිය.

- සැපයුම් මිල පුරෝකථනය
- ඵලදා අවශ්‍ය පොදිය
- ස්වාභාවික සොබා පවත්වා ගැනීම.
- ඒජන්තයන් මත සැලැස්ම පැහැර
- ඵලදා මෙන් පෙන්වීම මිලදී පෙන්වීම.

(ලකු 03)

II

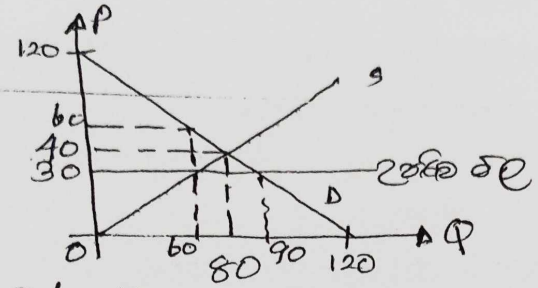


- සමතුලිතතාවේදී ආර්ථික අතිරික්තය A+B+C+D+E+F වූවේ.
- උපරිම මිලට පසු P3 මිලක්ඛ මිල තබා ගැනීමෙන් ආර්ථිකය අතිරික්තය A+D වූවේ
- කාර්යෝත්සාහයට වැටීමෙ සිදුවන අලාභ ප්‍රමාණය B+C වූවේ.
- උපරිම මිලකින් සමාජ යුතාසාධන තත්ත්වය E+F මගින් වූවේ.
- උපරිම තීරුවෙන්ත්සාහයට සහන සැලසීමේ තර්කවත් වූවත් නියාත්මක කළදී ආර්ථික අතිරික්තය හෙට එක E+F වූවාකොට් අහිමිවන බැවය.

(ලකු 04)

AnyScanner
අ.පො.ස උසස් පෙළ සියලුම විෂයන්ට අදාල ප්‍රශ්න පත්‍ර/පිළිතුරු පත්‍ර/සටහන් ලබා ගැනීමට Past Papers Wiki වෙත පිවිසෙන්න

III (අ)



(a) $Qd = 120 - P$ $\quad Qs = 2P$ $\quad Ed = Qd - Qs$

$Qd = 120 - 30$ $\quad Qs = 2(30)$ $\quad = 90 - 60$

$Qd = 90$ $\quad Qs = 60$ $\quad = 30$ (ලෙ 02)

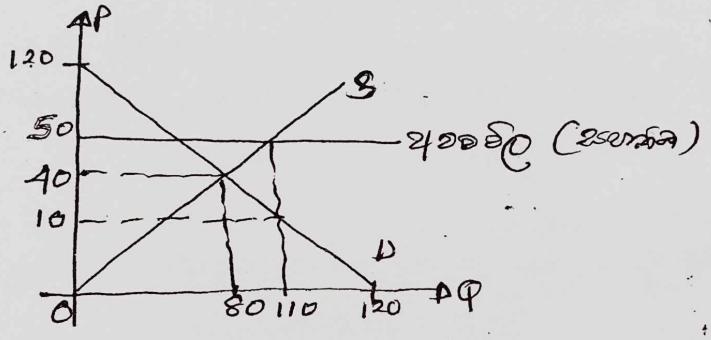
(b) $Qd = 120 - P$

$60 = 120 - P$ කැල්කෙඩ් වල අනුව්‍යලේ 60 ක්. (ලෙ 02)

$P = 120 - 60$

$P = 60$

(ආ)



(a) $Qs = 2P$ $\quad Qd = 120 - P$ $\quad$ බෙදුණෙදු වල = රු 10

$Qs = 2(50)$ $\quad 110 = 120 - P$

$Qs = 110$ $\quad P = 120 - 110$

$P = 10$ (ලෙ. 02)

(b) රජයේ ආදායම = (සහතික වල − බෙදුණෙදු වල) × ප්‍රමාණය

$= (50 - 10) \times 110$

$= 40 \times 110$ (ලෙ. 02)

$= 4400$

(c) සමාජ ප්‍රයෝජන හානිය $= \frac{(50-10) \times 30}{2}$ (විකල්ප ගණනයකින්ද සැලකිල්ලට ගන්න)

$= \frac{40 \times 30}{2}$ (ලෙ. 02)

$= 600$

(4) I – නිෂ්පාදන ක්‍රියාවලියක් යෙදී කාලය සම්පූර්ණ කරනු ලබන ආකාරය අනුව නිෂ්පාදනය වර්ගීකරණය කළ හැක. උදාහරණ ලෙස ගුවන් යානා නිෂ්පාදනය, ඉදිකිරීම් ව්‍යාපෘති ආදිය මෙම ක්‍රමයට නිෂ්පාදනය කරයි.

– නිරන්තර නිෂ්පාදන ක්‍රියාවලියක් යටතේ නිෂ්පාදන ප්‍රමාණය ඉහළ වන අතර ඒකක පිරිවැය අඩු වේ. එමෙන්ම නිෂ්පාදන ක්‍රියාවලිය ස්වයංක්‍රීය වීම නිසා ඒකක පිරිවැය තවදුරටත් අඩු වේ.

– නිරන්තර නිෂ්පාදන ක්‍රියාවලියක් යටතේ අන්තර්ක්‍රියා ප්‍රවාහන පහසුකම් අඩු වීම නිසා ද ඒකක පිරිවැය අඩු වේ. (ලකු. 04)

II – සෘජු ද්‍රව්‍ය අපතේ යාම් සිදුවීම.
– සුවිශේෂී නිෂ්පාදන
– නොදැනුවෙදැ විවිධත්ව හා නිපදවුම් කඩා කප්පාදුවීම.
– නොරැකී වැඩ වර්ජන සිදු වීම හා නොරැකී ලිහිසියන්වීම අනපේක්ෂිත හදිසි අනතුරු සිදුවීම. (ලකු. 04)

III (අ)
මුළු ආගමාරය = මිල × ප්‍රමාණය
= 150 × 80
= 12000 (ලකු. 01)

මුළු පිරිවැය = සම්මත මුළු පිරිවැය × ප්‍රමාණය
= 130 × 80
= 10400 (ලකු. 01)

ලාභය = මුළු ආගමාරය – මුළු පිරිවැය
= 12000 – 10400
= 1600 (ලකු. 01)

(ආ) නිෂ්පාදන අකාර්යක්ෂමතාය = මුළු ආගමාරය – මුළු සම්මත පිරිවැය
= 12000 – 7200
= 4800 (ලකු. 02)

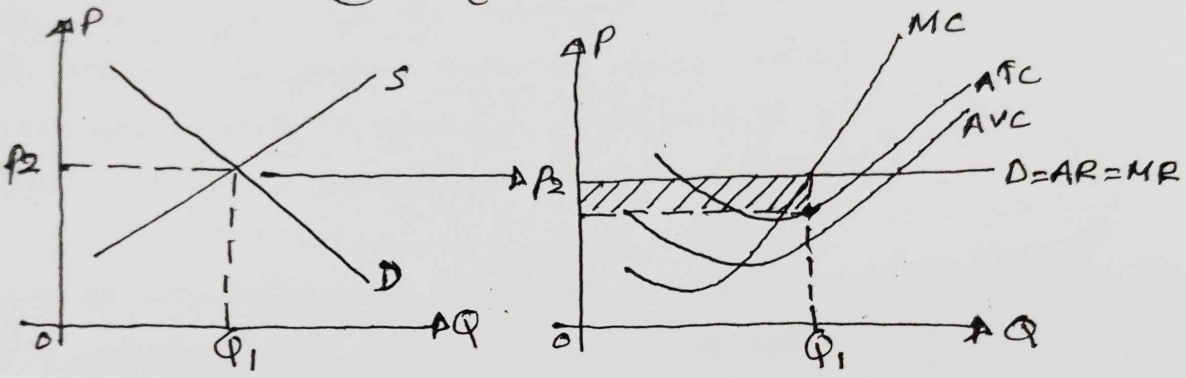
AnyScanner
අ.පො.ස උසස් පෙළ සියලුම විෂයන්ට අදාල ප්‍රශ්න පත්‍ර/පිළිතුරු පත්‍ර/සටහන් ලබා ගැනීමට Past Papers Wiki වෙත පිවිසෙන්න

IV (අ) - පරිපූර්ණ තරඟකාරී වෙළෙඳපොළ තුළ සිටින ආයතනයක් ආර්ථික ලාභ ලබමින් ක්‍රියාත්මක වෙමින් සිටින විට, ආයතනයේ සාමාන්‍ය මුළු පිරිවැය වෙළෙඳපොළ මිලට වඩා අඩුවිය හැකිය. (P>ATC)

- එසේම ඒකීය විචල්‍ය පිරිවැය වෙළෙඳපොළ මිලට වඩා අඩුවිය හැකිය. (P>AVC)
- ලාභ ලබමින් ක්‍රියාත්මක වන්නේ ලාභය උපරිම වූ ලක්ෂ්‍යයට (MR=MC / MC ප්‍රස්ථාරෙන් දැක්වීම) අනුව කෙටි කාලීන ආර්ථික ලාභය ලබන අවස්ථාවේ, අන්තිම ඒකකය මිලට සමාන වේ. (MC=P) (ලකු. 03)

(ආ)

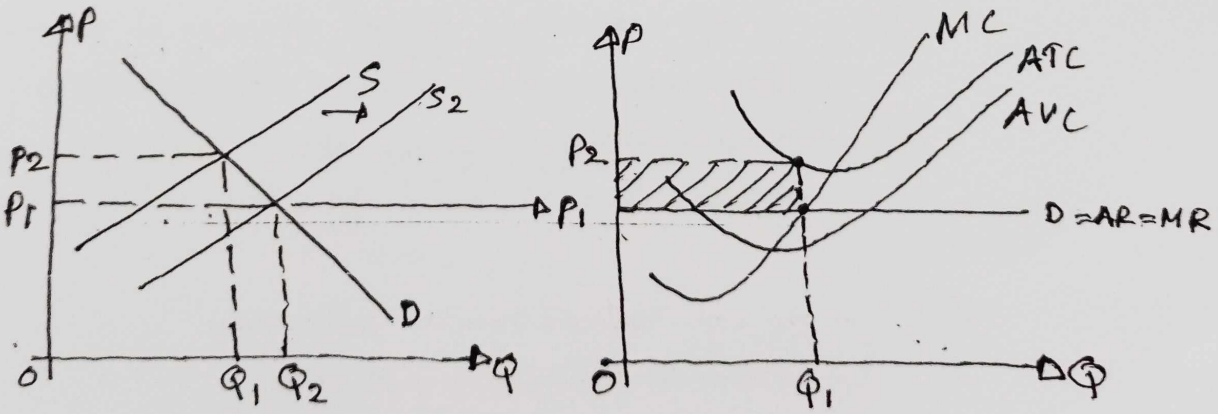
අන්තිම ඒකක තුළ සමතුලිත.



වෙළෙඳපොළ ආයතනය

(ලකු. 02)

නිමාන තුළ සමතුලිත.



වෙළෙඳපොළ ආයතනය.

(ලකු. 02)

(05) I - සාමාන්‍යයක් යනු කුමක්ද යන්න කෙටියෙන් පැහැදිලි කරන්න. ඔබ විසින් සාමාන්‍ය ගණනය කිරීමට යොදාගන්නා අවස්ථාවක් ඇසුරින් සාමාන්‍ය යනු කුමක්ද යන්න පැහැදිලි කරන්න. (ලකුණු 01)

- ඉවුම් මිල, නිෂ්පාදකයා විසින් කලින් නිෂ්පාදිත කර විකුණා, නිෂ්පාදකයාට ලබාදුන් සහනාධාර අඩු කිරීමෙන් පසු ලැබෙන මුදල නිෂ්පාදකයාගේ මිල යි. එනම් නිෂ්පාදන ස්ථානයෙන් පාරිභෝගිකයා වෙත ප්‍රවාහන සඳහා වැය වූ මුදල් නිෂ්පාදකයා විසින් අයකරනු ලබන මිල වේ.

නිෂ්පාදකයාගේ මිල = ඉවුම් මිල + නිෂ්පාදකයා මත පනවනු ලබන සහනාධාර (ලකුණු 01)

- පාරිභෝගිකයා සතුව පවතින්නේ සාමාන්‍ය මෙන් පෙනෙන සඳහා ගෙවිය මිල පැහැදිලි කරන්නේ මිල ලෙස හැඳින්වීමේ. නිෂ්පාදකයාගේ මිලට පුම්බනය ගාස්තු සහ මෙවැනි අංශකයන්, ගැනුම්කරු විසින් ගෙවිය යුතු වූ අතුරුලාභ කෙරෙ, ගැනුම්කරුවාට ලබාදෙන සහනාධාර ඇතුළුකොට ගැනුම්කරුගේ මිල යැයි හඳුන්වයි. (ලකුණු 01)

II (අ) - දළ දේශීය නිෂ්පාදිතයට කිසිදු තලපතුළක් නොවේ. එක්කෝ වැඩි කිසිලයක් විදේශගත පුද්ගලයින් මෙරට අණෙක්සිකයන් සහ නිසා දළ දේශීය නිෂ්පාදිතයට ඇතුළත් නොවේ.

(ආ) - දළ දේශීය නිෂ්පාදිතය රු. බිලියන 100 ක් වශයෙන් යයි.
මෙහි විරෝධී කුමද, ඵලදායී ක්‍රියාවලියක් මගින් සියලු දළ දේශීය නිෂ්පාදිතයට ඇතුළත් කරයි.

(ඉ) - දළ දේශීය නිෂ්පාදිතය රුපියල් 50,000 ක් වශයෙන් යයි.
අවිනිශ්චිත කරන සාධකයක් වෙනුවෙන් නියුක්ත වෙමින්.

(ඊ) - දළ දේශීය නිෂ්පාදිතය රුපියල් බිලියන 5 ක් වශයෙන් යයි.
අවිනිශ්චිත වෙමින් සහ වෙනුවෙන් දළ දේශීය නිෂ්පාදිතයට ඇතුළත් වේ. (ලකුණු 04)

III
- දළ දේශීය ස්ථාවර මූල්‍යන සම්පාදනය
- සොයා බොහෝවිට / පරිලේඛනය සොයා
- වටිනාදේ ඇස්කරුණිය (ලකුණු 03)

AnyScanner
අ.පො.ස උසස් පෙළ සියලුම විෂයන්ට අදාල ප්‍රශ්න පත්‍ර/පිළිතුරු පත්‍ර/සටහන් ලබා ගැනීමට Past Papers Wiki වෙත පිවිසෙන්න

IV (a) $Y = E$

$Y = C + I + G + X - M$

$Y = 300 + 0.8Yd + 250 + 200 + (-50)$

$Y = 700 + 0.8(Y - T + Tr)$

$Y = 700 + 0.8(Y - 100 + 120)$

$Y = 700 + 0.8Y - 80.0 + 96.0$

$Y = 716 + 0.8Y$

$Y - 0.8Y = 716$

$0.2Y = 716$

$Y = \frac{716}{0.2}$

$Y = \underline{3580}$ (e. 04)

(b) $Yd = Y - T + TR$

$= 3580 - 100 + 120$

$= \underline{3600}$

$C = 300 + 0.8Yd$

$C = 300 + 0.8(3600)$

$C = 300 + 2880$

$C = \underline{3180}$

$S = -300 + 0.2Yd$

$S = -300 + 0.2(3600)$

$S = \underline{420}$

(e. 02)

(c) $KG = \frac{1}{1 - MPC}$

$= \frac{1}{1 - 0.8}$

$= \frac{1}{0.2}$

$= \underline{5}$

$KG = \frac{\Delta Y}{\Delta G}$

$5 = \frac{2420}{\Delta G}$

$\Delta G = \frac{2420}{5}$

$= \underline{484}$

(e. 04)

(6) I – සෙන්ටෑම මුදල් සප්ලයි ලිහිසියතා ඉල්ලුම පිළිබඳ සඳහන් කිරීම. (ලකු 01)

- ගනුදෙනු අරමුණ
- පූර්වාලෝකන අරමුණ
- මිල අරමුණ
- ආදායම් මාධ්‍යක අරමුණ
- පොළී අනුපාතය
- ධූරිය නුසුදුස් තත්ත්වය

(ලකු. 04)

II : මුදල් සොයන සහ සපයන මිල සවිය අතර අනුලම්බ සම්බන්ධතාවයක් පවතින බව මුදල් ඉල්ලුම්කරුවා පුරෝකථනය කරයි. එහෙත් මුදල් ඉල්ලුමේ සාමාන්‍ය සොයාගැනීම් මිල සහසම්බන්ධ නොවන බවත් ඇස්තමේන්තු ලැබේ. ඒ අනුව ආරම්භයේදී මුදල් සැපයුම දෙගුණ වූ විට, මිල මට්ටමද දෙගුණ වූ බව. (ලකු. 02)

- $MV = PT$ හෝ $MV = PY$ යන විකල්පයෙන් සම්කරණය ඇසුරින්, මුදල් ප්‍රමාණයද දෙගුණ වූවොත් මුදල් සැපයුම හා මිල මට්ටම අතර සමානුපාතය පෙන්වා දීම. මෙම සම්කරණය මගින් අඩුවැඩි වීම්වලදී හැසිරීම සම්බන්ධයෙන් කරුණු ලකුණ උපකල්පන පදනම්කරගනිමින් විස්තර සම්කරණය මිල මට්ටම නිර්ණය කිරීමට කොතරම් ප්‍රයෝජනවත් වේද (මුදල් ප්‍රමාණවාදය තවදුරටත්) පෙරපොත අනුව. (ලකු 01)
- මුදල් සැපයුම අරමුණු (V) ස්ථාවර වශයෙන් පවතින බවත්, ඉදිරිය අපේක්ෂිත ආදායම (Y/T) ස්ථාවර වශයෙන් පවතින බවත් යන උපකල්පන දෙක මුදල් සැපයුම (M) වෙනස් වීමක් සමානුපාතික මිල මට්ටමෙහි සමානුපාතික වෙනසක් ඇතිකරන බව මෙම සමීකරණය පුරෝකථනය කරයි. (ලකු. 01)

III – ප්‍රධාන ආර්ථිකයන් වෙනුවෙන්
- විවෘත ආර්ථික ප්‍රතිපත්තිය වෙනුවෙන්
- නිල විදේශ සංචිත කළමනාකරණය
- ඔබගෙන් මුදල් නිකුත් කිරීම.
- රටේ ආර්ථික උපදේශකයා, ඒජන්සිය හා ප්‍රධාන නියෝජිත ආයතන කටයුතු කිරීම
- ඒජන්සිවල අරමුදල් ලෙස ක්‍රියා කිරීම.
- එපරිදි, ප්‍රධාන සේවයේ සහ රටේ ආර්ථිකයේ ස්ථිරසාර කටයුතු සඳහා ගැලපෙන ආර්ථික වෙළෙඳපොළ කළමනාකරණය, නියාමනය හා ආරක්ෂාකාරී

(ඔබගේ ප්‍රශ්න 04 ම ලකුණු 04 බැගින් ලකාදෙන්න.)

SCAN AnyScanner
අ.පො.ස උසස් පෙළ සියලුම විෂයන්ට අදාල ප්‍රශ්න පත්‍ර/පිළිතුරු පත්‍ර/සටහන් ලබා ගැනීමට Past Papers Wiki වෙත පිවිසෙන්න

සඳහා අවශ්‍ය ද්‍රව්‍යයන් ස්වභාවයට ඇතුළුවීම් ලබා ගැනීමෙන් ඉවත්වීම් කරනු ලබන වෙළඳාම් ක්‍රියාදාමය ක්‍රියාත්මක වේ.

– ඇතැම් සමාගම් තමන් නිපදවන භාණ්ඩ පාරිභෝගිකයා වෙත ලබා දීමට පෙර ඒවා ගබඩා කිරීමට අවශ්‍ය වේ. එවැනි සමාගම් ද්‍රව්‍යයන් ඇතුළුවීම් ඉවත්වීම් ලබා ගැනීමේදී ඒවා ගබඩා කිරීම සඳහා ගබඩා පවත්වා ගෙන යයි. (ලකු. 02)

IV – ඇසෙට් සමාගම මූල්‍යමය කටයුතු සඳහා ප්‍රධාන ගිණුම් දෙකක් භාවිත කරයි.

1. විකුණුම් ගිණුම
2. ලැබිය යුතු ඒවා පිළිබඳ ගිණුම (මහා ලේජරයේ හා සහාය ලේජරයේ)

(ලකු. 02)

– ඇසෙට් සමාගම මූල්‍යමය කටයුතු සඳහා ප්‍රධාන ගිණුම් දෙකක් භාවිත නොකරයි.

1. ලැබිය යුතු ඒවා පිළිබඳ ගිණුම භාවිත නොකරයි
2. ලැබිය යුතු ඒවා පිළිබඳ ගිණුම් භාවිත නොකරයි (ලකු. 02)

V (අ) සේවා කාර්ය මණ්ඩල පඨාවලිය = මූල්‍ය කාර්ය අංශයේ — ශ්‍රම වෙළඳපොළ සේවා විකුණුම්.

(ආ) ඉන්වෙන්ටරි පඨාවලිය = ගබඩා හා ලැබීම් අංශයේ — ශ්‍රම වෙළඳපොළ සේවා මූල්‍ය කාර්ය අංශය විකුණුම්.

(ඇ) ඝනකම්ති ඇණවුම් පඨාවලිය = ගබඩා හා ලැබීම් අංශයේ — මූල්‍ය කාර්ය අංශය විකුණුම්.

(ඈ) ගෙවිය යුතු ඒවා පිළිබඳ ගිණුම = ගබඩා හා ලැබීම් අංශයේ — ආයතන මූල්‍ය කාර්ය අංශය සඳහා ගෙවීම් විකුණුම්.

(ලකු. 04)

(08) I - නිරීක්ෂණ කාර්යය යනු - යම් ඉලක්ක කොට ගෙන් ඉලක්ක කරා යමින් කාර්යයන්ගේ ප්‍රගතිය නිරීක්ෂණය කළ හැකි කෙනෙක්. එමඟින් අදාළ ගැටලු හඳුනාගෙන ඒවාට පිළියම් යොදා ගැනීමට හැකි වේ. (ල. 02)

- නිරීක්ෂණ කාර්යය අදාළ වන්නේ කාර්යයන්ගෙනයි කියන්න.
- ඇගයීම් කාර්යය යනු - යම් ඉලක්කය ගෙන් ඉලක්කය කරා අපි ඇවැසිනා පියවරයන්ගේ ප්‍රගතිය කළ හැකි කෙනෙක්.
- ඇගයීම් කාර්යය අදාළ වන්නේ අනුමත ආයෝජන ව්‍යාපෘතියි කියන්න

(ල. 02)

II - අනාගත සඳහා විද්‍යාඥයන්ගේ ඉල්ලුම වැඩි කිරීම
- ආනයන සඳහා දේශීය ඉල්ලුම වැඩි කිරීම
- අනාගත සඳහා වැඩි කිරීම.
- අනාගත ඉල්ලුම හා ආනයන ඉල්ලුම වෙන්කර හඳුනා ගැනීම අනාගත ඩේටා, යන්ත්‍රයේ ධාරිතාවය වැඩි කිරීම (මාර්ශල් - ලර්නර් කොන්දේසිය)
- දේශීය උද්‍යෝගය තරඟකාරී කිරීම

(කරුණු 04ට ලකුණු 04 යි)

III (අ) වෙළඳ ශේෂය = අපනයන - ආනයන

= 1000 - 1200

= -200

(ල. 02)

(ආ) සුද්ධ අපනයන = වෙළඳ ශේෂය + සේවා ගිණුමේ ශේෂය

= -200 + 100

= -100

(ල 02)

(ඉ) ශ්‍රී ලංකා ගිණුමේ ශේෂය = අපනයන හා සේවා ගිණුමේ ශේෂය + ආරම්භක ආදායම් ගි. ශේෂය + ද්විතීයික ආදායම් ගි. ශේෂය

= -100 + 200 + 150

= 250

(ල 02)

AnyScanner
අ.පො.ස උසස් පෙළ සියලුම විෂයන්ට අදාළ ප්‍රශ්න පත්‍ර/පිළිතුරු පත්‍ර/සටහන් ලබා ගැනීමට Past Papers Wiki වෙත පිවිසෙන්න

11 (අ) මුල්ම කුඩා ප්‍රමාණය යි සමතුලිතතා ඒකක ගණන යි සංඛ්‍යාත්මකව ඒකක ගණන යි

= 1000 + 2000 + 500
= 3500 (ලකුණු 02)

(ආ)

මාසික		මාසික	
මුල්ගිණුම් ශේෂය	5000	මුදල් හා සමාන	2500
		බැංකු	2500
	5000		5000

(ලකුණු 02)

(ඇ) $\Delta M = \Delta R \times k$
$= 2000 \times 10$
$= 20,000$

මෙහි දී මෙහි තෙවන ගණනය
මුල්ගිණුම් ශේෂය = 25000

$M_1 = CP + DDP$
$= 1000 + 25000$
$= 26000$

(ලකුණු 03)

07 I ගුණාත්මක ක්‍රම සඳහා

- සම්මුඛසාකච්ඡා සිදුකළ හැකිය හොඳින්.
- නිරීක්ෂණ සාමාන්‍යයෙන් වැඩ සම්මුඛසාකච්ඡා සිදුකළ හැකි.
- අධ්‍යයනයන් කාර්යක්ෂම ලෙස යොදාගත හැක.

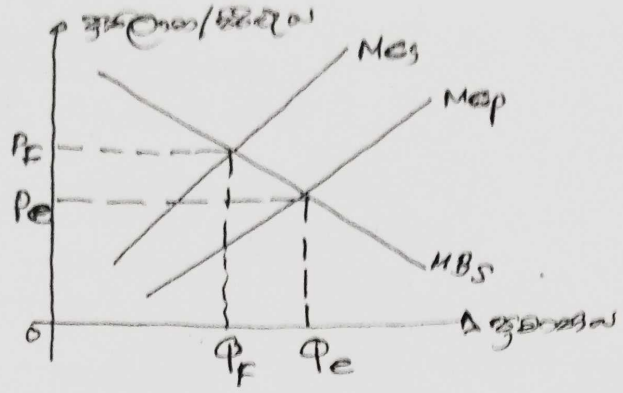
II - ඉඳිරිපත්කිරීම්, සාරාංශගත කිරීම්, නිගමන ආදියෙහි

අවාසි හෙවත් දුර්වලතා

- සම්මුඛසාකච්ඡා සිදුකළ හැකි නැති,
- නිරීක්ෂණ හොඳින්ම සිදුකළ හැකි නැති,
- දීර්ඝකාල කාලීන ගවේෂණ ඉදිරිපත්කිරීම් සාර්ථකව හෙවත් ලබාගත හැකි.

III - උදාහරණ, කුඩාකරවීම්, ඇස්තමේන්තු කිරීම්. (ලකුණු 04)

II



- අන්තිම සමාජ පිරිවැය හා අන්තිම පාරිභෝගික සතුට සමතුලිත වෙනතෙක් වෙළඳපොළ ආර්ථිකයක් ක්‍රියාත්මක වෙන්නේ නම් යහපාරිභෝගික මිනෙන් පුහුණුවීම්වලදී Q_F වීම සුදුසු.
- වෙළඳපොළක් අඛණ්ඩවම කාර්යක්ෂම පිරිවැය නොවෙනස්ව තබමින් ව්‍යුත්පන්න අන්තිම පිරිවැය හා අතිරික්ත සතුට සමතුලිත වෙන්නේ නැතිනම් විභේදනය වෙළඳපොළ තිබුවත් එය යහපාරිභෝගික මිනෙන් පුහුණුවීම් නොවේ. මේ නිසා අප නිර්ණායකයන් සොයන්නේ අප අපේක්ෂාවන්නේ, නිදහස් වෙළඳපොළක් වල නිර්ණායකයේ සාධක, කාර්යක්ෂම වෙළඳපොළ ඇයෙන් කරයි. (ළ. 04)

III - අසීමිත අතුල් සම්පත සඳහා ආණ්ඩුව විසින් සිදුකරනු ලබන ආයෝජන තීරණ, සදු අයකරීම්, කාය ගැන්වේ කිරීම සඳහා තක්ලිමේන්තුවේ අනුකූල ලෙස ගනුදෙනු වලදී කරනු ලබන ලේඛණය විසර්ජන වෙනුවෙන් ලෙස හැඳින්වෙන අතර, ඒ සඳහා තක්ලිමේන්තුවේ අනුකූල ලබන් පහසුකම් කෙරෙ සම්බන්ධ වීම සිය විස්තරය පහත දැක්වෙන්නේ.

- විසර්ජන වෙනුවෙන් මුදල් වෙනුවෙනුත් නා අතර, අදාළ මුදල් සම්පත් වියදම් කිරීම ගැන්වේ, ඒකාබද්ධ අරමුදලින් රජය මුදල් ලබාදීම සඳහා තක්ලිමේන්තුවේ අනුකූල ලබාගත යුතු වේ. (ළ 02)

- කිසියම් අයවැයමය කිරීමක් නොවෙන් පෙන් ඇතිවෙනතෙක් අවැසිවීම පෙන් සාමාන්‍ය රජයක් අවශ්‍ය වී පෙන් අසීමිත මුදල් සම්පත සඳහා මුදල් කිරීම අපේක්ෂිත විසර්ජන වෙනුවෙන් මුදල් කිරීම නොවෙනස් අවස්ථාවන් හැදී, විසර්ජන වෙනුවෙන් මුදල් කිරීම නොවෙන් ඒ සඳහා

AnyScanner
අ.පො.ස උසස් පෙළ සියලුම විෂයන්ට අදාළ ප්‍රශ්න පත්‍ර/පිළිතුරු පත්‍ර/සටහන් ලබා ගැනීමට Past Papers Wiki වෙත පිවිසෙන්න

(ඊ) මුළුමනින්ම ඉවත් කිරීමේ පිරිවැය = ගුදුම් ගබඩා පිරිවැය + ගුදුම් කුලිය + ගුදුම් තොග පිරිවැය + කාර්මික පිරිවැය

= 160 + 180 + 20 + 90

= 450 (ලකුණු 02)

II - ආහාරය ආරාධිත සිටුවම්කරුගේ වීට ඇසිය යුතු වීම
- ආහාරය කල්තබා පිසිය හැකි වීම
- ආහාරය ඉතිරිවීම අවම වීම
- සිටුවම්කරු රාජ්‍ය නිලධාරී නොවීම නිසා අඩු වියදමක් වීම
- සංවේදී හා වෙනසක් නොවන ආහාර වීම
- ආහාරය විවිධත්වයෙන් යුතු වීම
- ආරාධනා යොමුවේ හා ඒවා ලබාගත් දිනය. ආහාරය වීළඳ ගන්නේ කවුද ගුදුන්නේ දෙන්නාගේ උදුම්මෙන්ය කවුද යන්න සඳහන් වීම

(ලකුණු 04 ට ලකුණු 04 යි)

(9) I - ආර්ථිකයක සිටින සෑම පුද්ගලයෙකුම නිශ්චිතව තෘප්තිමත් කරවීමට දිවුරුම්කරුවාට පුළුවන්කම වීම ආර්ථික කොදුරුවීම ලෙස හඳුන්වා වේ. යම්කිසි දුර්ලභ සම්පත්වලින් යම් දියුණු මිනිසුන් පිරිසක් තම අවශ්‍යතාවන්ගෙන් උපරිම තෘප්තියක් ලබාගැනීම ආර්ථික ක්‍රියාවලිය ලෙස හැඳින්වේ.

(ලකුණු 01)

- ආර්ථික කොදුරුවේ ප්‍රධාන ලක්ෂණ.
  - කෘෂිකර්ම කේවිකාරය
  - ධීවර දැල්ලිකාරය
  - වාණිජ කුලිකාරය හා ව්‍යාපාරිකාරය
  - ආර්ථික ස්ථාවරත්වය
  - දේශීය ආර්ථික ස්ථාවරත්වය
  - සෞඛ්‍යය සේවාකාරී අධිකාරිය
  - යාතායාතය
  - කෙඳුරුවේ සහ ආරක්ෂාවේ වියදම් වීම.

(යම් කරුණු 4 ක් ලිවීම සඳහා ලකුණු 4 ක් ලබා දෙන්න)

II - ඉතා ඉහළ මිනුම් සංවේදීතාවක් පවතී
- ඉහළ මිනුම් සංවේදීතාවක් පවතී
- මධ්‍යම මිනුම් සංවේදීතාවක් පවතී
- අඩු මිනුම් සංවේදීතාවක් පවතී. (ලකුණු 04)

III - දිරායන ස්වභාවය පැහැදිලි කිරීම සඳහා ජීනයානයේ ප්‍රධාන සංකල්පයන් ලෙස දැක්විය හැකි දේ සහ මහායානය දිරායන ප්‍රවණතාය වේ.

$$\text{මහායාන දිරායන ප්‍රවණතාය} = \frac{\text{දිරායන ස්වභාවය පැහැදිලි කිරීමට ගත් ඡේද ගණන}}{\text{මුළු ඡේද ගණන}} \times 100$$

- දිරායන ආකල්ප තිබූ දිරායන ස්වභාවය ප්‍රකාශනයන් ලෙස දැක්වෙන්නා වූ ඡේද ගණන වැඩි වීම මගින් දිරායන ආකල්ප ප්‍රවණතාය ලෙස හඳුනාගත හැකිය.

(ලකුණු 04)

IV (අ) - අප්‍රමාදය
- පැහැදිලිවීමෙන් යුතු ආඛ්‍යාත
- ආවාහික සුදුමලයන් යුතු ආහාර
- අති ආහාරයේ වැඩෙන රෝගීන් සඳහා දිවා නින්දේ
- මත්ද්‍රව්‍ය සඳහා පෝෂක සහනාධාර
- විනාශ වැදුම්
- පාසලේ සහයෝගී සෞඛ්‍ය ආරක්ෂක වැඩසටහන්

(කිසියම් කරුණු 03 ට ලකුණු 03 බැගින්)

(ආ) - සෘජව ආර්ථිකයේ අදාළවන් විය යුතු වන කොටස් ඔබින් ඊක්විටි කොටස් අතහැර ආර්ථිකය, හිමිකම් මුලට වඩා වැඩි වීම.
- සෘජව ආර්ථිකය තුළ සාමාන්‍යයෙන් අඩු සම්භාව්‍යතාවයක් දැරීමේ හැකියාව, ස්ථාවර පිරිවැය ඉහළ වීම නිසා ඉහළ අවදානමක් ඇතිවීම.
- සෘජව ආර්ථිකය තුළ වැඩසටහන් වල ප්‍රසාරණයක් හා ගුණාත්මක භාවය (ඵලදායීව කළමනාකරණය කිරීම සඳහා අවශ්‍ය දක්ෂතාවන් නොවීම)
- සෘජව ආර්ථිකය තුළ වැඩසටහන් සඳහා අදාළ වීමට හා ස්ථාවර වියදම් වීමට තොරතුරු ප්‍රමාණයක් නොවීම.
- සෘජව ආර්ථිකය තුළ වැඩසටහන් ඵලදායීතාවය අඩු වීම.
- දිරිමුදු සුදුමලයන් ලබාදීම මානසිකත්වයක සිරකිරීමට හේතුවීම

(කරුණු 04 ට ලකුණු 04 බැගින්)

AnyScanner
අ.පො.ස උසස් පෙළ සියලුම විෂයන්ට අදාළ ප්‍රශ්න පත්‍ර/පිළිතුරු පත්‍ර/සටහන් ලබා ගැනීමට Past Papers Wiki වෙත පිවිසෙන්න

(10) I - නිදහසින් පසු පසුගිය වසර 76 ක කාලය තුළ ශ්‍රී ලංකා ආර්ථිකය විවිධාකාර වී ඇතත් වර්ෂයකට 4% ක් පමණ වූ යාමාන්‍ය වර්ධනයක් පෙන්වූ බවත් ආර්ථික කඳවුරුවල ඇතැම් වසර කිහිපයකදී පසුබැසීම් සිදුවී ඇති බවත් පැහැදිලි වේ. මේ තත්ත්වය ඇතිවීමට බලපෑ හේතූන් කිහිපයක් පහත දැක්වේ.

- දීර්ඝ කාලයක් පුරාවට ස්වාභාවික ගාලුම් හා බිම්මල් වල නාස්වීම්
- වනාන්තර ඒකාධිකාර ආර්ථික ක්‍රියාකාරකම් වෙනුවට, උපත්වාදු වන ක්‍රියාකාරකම් නිර්මාණය වීම
- ජනගහන වර්ධනය වෙනස්වීම් හේතුවෙන් ආර්ථික ක්‍රියාකාරකම් පිළිබඳව දැඩි නීතිරීති බලාත්මක කර තිබීම.
- ආර්ථික කොටස්වල ඉහළ ආයෝජන රැඳවුණාවා වෙනුවට දේශපාලනික හා ආගමික කොටස් වලින් ආයෝජන ලොව්වී කිරීම.
- ගෝලීය ආර්ථික ප්‍රවණතාවයන් හා ඉඩ ප්‍රශ්නවල සොදුරුකම්වල විදේශ වෙළඳාම පාඩුවී වීම ඇයත් වීම.
- නීතිය තහවුරු ආර්ථික, දේශපාලන, ආඩම්බරකාරී කල්පනාකාරයන්ගේ නීති ක්‍රියාවලිකාරයන් නිවූ නොකිරීම.

(කොටස 05 ට ලකුණු 05 යි)

II - වෙන සංවර්ධන ක්‍රියාවලියක් වෙනුවෙන් සාමාන්‍ය වැදගත් වන ආකල්පමය ප්‍රගතිය පහත දැක්වේ. සාමාන්‍යමය ප්‍රගතිය අත්‍යාවශ්‍ය වන තරමට අපහසු ප්‍රතිඵලයක් ඇතිකරනු ඇත.

- පරිසර සම්පත්කරණය අඩු කිරීම
- ආර්ථිකයක සමස්ත සාමාන්‍යයේ කාර්යක්ෂමතාවය අඩු කිරීම,
- ආර්ථිකයන් තුළ ඇතිවිය යුතු ව්‍යුහාත්මක පරිවර්තනයන් සිදු නොවීම,
- දේශීය හා විදේශීය තරඟකාරීත්වය අඩුවීම.
- තරඟකාරීත්වය හා ඵලදායීතාවය ප්‍රගතිය කඩා වැටීම.
- මානව ප්‍රාග්ධන සංවර්ධනය නොවීම ඇතිවීම.
- ඵලදායීතාවය ප්‍රගතිය හා ප්‍රගතිශීලීත්වය වැඩි වැඩිවීම.
- ඍණාත්මක තරඟකාරීත්වයට අභිනතර වලිදැවී වැටීම.

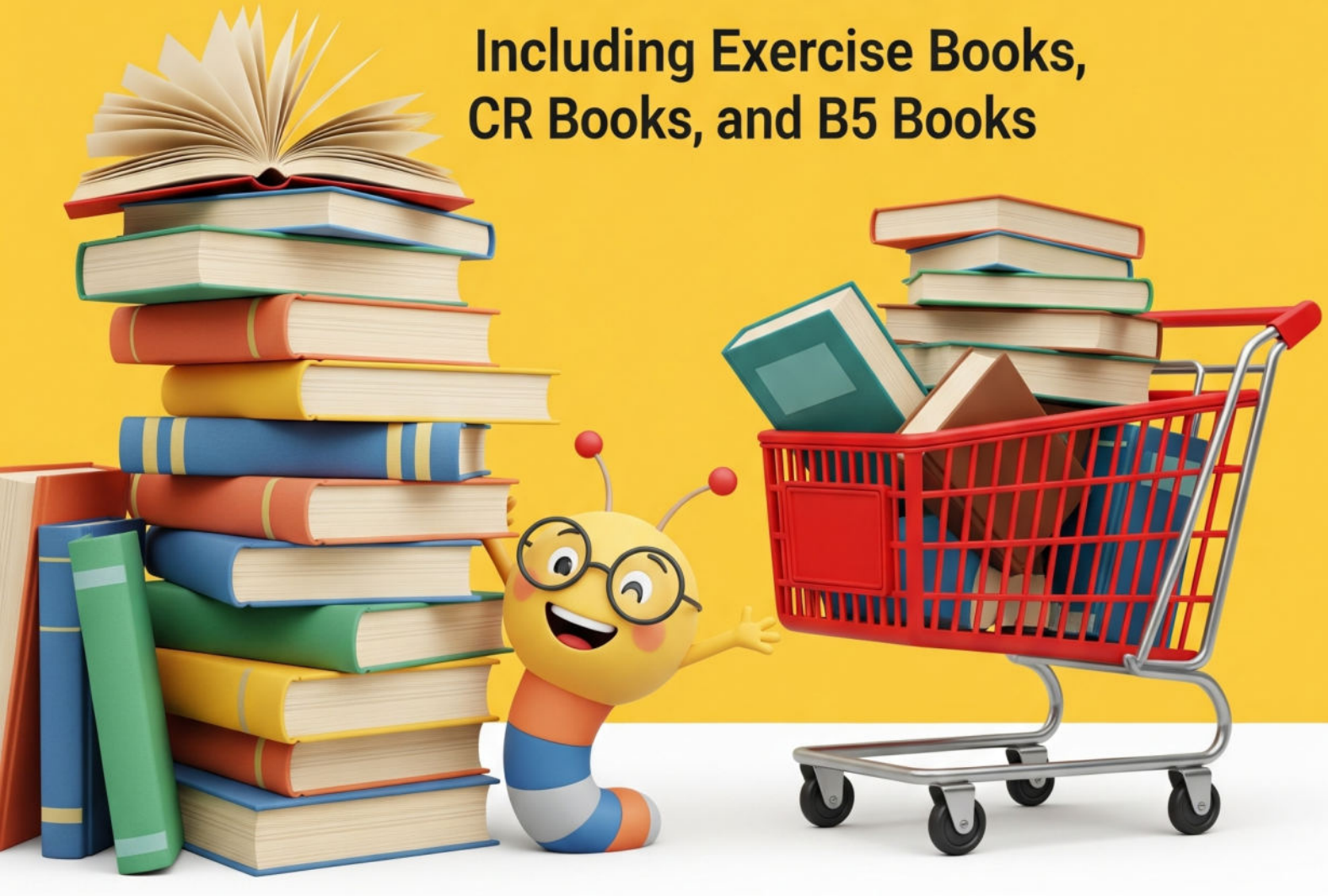
(ඉහත කරුණුවලින් ලකුණු, මැනීම් කරුණු 05 ට ලකුණු 05 යි)

LOL
Book Store

වාරෙටම ඕන කරන පොත් එකපාර
ඕඩර් කරලා දැන් ගෙදරටම ගෙන්වා ගන්න

25% OFF
ALL BOOKS

**Including Exercise Books,
CR Books, and B5 Books**



ඕනෙම අභ්‍යාස පොතකට 25%ක විශේෂ වට්ටමක්

ORDER BOOKS FROM LOL BOOKS STORE

0372060110 **WWW.LOL.LK**

071 777 4440 (WhatsApp)

Cash On Delivery Available

ORDER A/L TERM TEST PAPERS, SHORT NOTES, WORKBOOKS & REVISION BOOKS

SINHALA, ENGLISH & TAMIL MEDIUM



LOL BOOK STORE

CASH ON DELIVERY AND KOKO PAYMENT AVAILABLE

0717774440 (WHATSAPP)

WWW.LOL.LK