සියලු හිමිකම් ඇවිරිණි
All Rights Reserved

දකුණු පළාත් අධ්‍යාපන දෙපාර්තමේන්තුව

අවසාන වාර පරීක්ෂණය - 2018

09- ශ්‍රේණිය

පෙරදිග සංගීතය

නම/විභාග අංකය :- ..... කාලය: පැය 02 යි.

I කොටස

සියලු ම ප්‍රශ්නවලට පිළිතුරු සපයන්න.

- වඩාත් නිවැරදි පිළිතුර යටින් ඉරක් අඳින්න.

(01) ප රි ග ම ප ධ නි ලෙස ශුද්ධ ස්වර 07 යොදෙන මේලය කුමක් ද?
(1) බිලාවල් (2) කාෆි (3) කල්‍යාණ (4) තෙහරවී

(02) ඉන්දීය ගසල් ගායනයේ දී. තූර්ති සංගීතයේ දී වක්මන් පැදුරු සාජ්ජවලදී බහුලව යොදා ගන්නා ස්වර වාද්‍ය භාණ්ඩයකි.
(1) ඕගන් (2) එකෝඩියන් (3) සර්පිනාව (4) ගිටාරය

- පහත දැක්වෙන ස්වර ඇසුරෙන් 3, 4, 5, 6 ප්‍රශ්නවලට පිළිතුරු සපයන්න.

ග රි ග රි , ස රි ග ප , ග ප ග ප , ධ ස් ධ ප , ග රි ග රි , ප රි ග

(03) ඉහත ස්වර සංගතිත්ව අයත් රාගය වන්නේ,
(1) බිලාවල් (2) භූපාලි (3) කාෆි (4) තෙහරවී

(04) ඉහත රාගයේ වාදී ස්වරය වනුයේ,
(1) ෂඩ්ජය (2) රිෂභය (3) ගාන්ධාරය (4) පංචමය

(05) ඉහත රාගයේ මධ්‍යමය සහ නිඝාධය යන ස්වර දෙක
(1) විවාදිය (2) විවාදිය (3) සංවාදිය (4) අනුවාදිය

(06) ඉහත රාගය අයත් ජාතිය වනුයේ,
(1) සම්පූර්ණ සම්පූර්ණ (2) ෂාඩව ෂාඩව (3) ඕඩව, ඕඩව (4) ඕඩව සම්පූර්ණ

(07) ගිටාරයේ භාත් ඝය ප්‍රසර කර ඇති ස්වර පිළිවෙලින් තෝරන්න.
(1) EADGBE (2) EAGDBE (3) EGDABE (4) EBEADE

(08) ස්වර පුවරුවෙන් ගීත තනුව වයන විට බැලෝවේ ඇති බොත්තම්වලින් රිද්මයානුකූලව ස්වර (chords) වාදනය කළ හැකි භාණ්ඩය
(1) එකෝඩියන් (2) සර්පිනා (3) පියානෝ (4) මෙලෝඩිකා

(09) ශ්‍රී ලංකාවේ කණ්ඩායම් ගීතයක් නොවන්නේ,
(1) ඉුළු ගතම වෙහෙසුනා (2) රුවන් පුරේ අපේ ගම හමයි
(3) මංගෝ කළු නැන්දේ (4) පසර වසන තුරු

(10) ප ප ග / ම ම රි / ග ග ප / රි - -
යන ප්‍රස්තාරය බටහිර ප්‍රස්තාර කරනයේදී උචිත කාල සංකේතය (Time signature) වන්නේ,
(1) 4_4 (2) 3_4 (3) 2_4 (4) 6_8

(11) 
මෙම B♭ මේජර් ස්කේලයට අයත් Key signature අනුව මෙම ප්‍රස්තාරයේ,
(1) ග නි කෝමල වේ. (සූ නි) (2) ග නි ශුද්ධ වේ. (ග නි)
(3) ග ධ කෝමල වේ. (සූ ධ) (4) ග ධ ශුද්ධ වේ. (ග ධ)

(12) දොඹොරා නම් ගීත අංගය යෙදෙන නූර්හි ගීතයක් වන්නේ,
(1) අහස් දුක වාන්ට බෑ දැන් මගේ... ගීතයයි. (2) ආරන්නේ ඉන්නා මේ රමණා... ගීතයයි.
(3) සිරි පැතඛොධි මාලිගාවෙදී... ගීතයයි. (4) විපසනා දීනේකි මෙක... ගීතයයි.

(13) සුනුවටය, තාරාවෝ ඉගිලෙති, නලදමයන්හි, දෙපාතෝ, නව නාට්‍ය අතරින් කිහිපයකි. මේ අතර ජන ගී කතු ඇසුරින් නිර්මාණය කළේ,
(1) සුණුවටය නාට්‍යයි. (2) තාරාවෝ ඉගිලෙති නාට්‍යයි.
(3) නල දමයන්හි නාට්‍යයි. (4) දෙපාතෝ නාට්‍යයයි.

(14) "ග ම, ම ග ම රි ස" යන ස්වර සංගතිය අයත් වනුයේ,
(1) බිලාවල් රාගයටයි. (2) කාෆි රාගයටයි.
(3) භූපාලි රාගයටයි. (4) භෛරවී රාගයටයි.

(15) දැනට වළලු, වන්නම් සවිදම්, මල්පරා බැල්ම තෙලා, රුක් අත්තන මල මුදුනේ... යන ගීත ජන ගී කතු ආශ්‍රිත ගරල ගීත වේ.
මින් නෙළුම් ගී කතුව පාදක කරගත් නීලා චිත්‍රමසිංහයන් ගායනයට දායක වූ ගීතය වන්නේ,
(1) දැනට වළලු (2) වන්නම් සවිදම්
(3) මල්පරා බැල්මතෙලා (4) රුක් අත්තන මල මුදුනේ

(16) ගැටබෙරය, දවුල. තම්මැට්ටම, හොරණෑව, යක්බෙරය යන අවනද්ධ භාණ්ඩ දේශීය භාණ්ඩ වර්ගීකරණය අනුව අයත් වන්නේ,
(1) ආනත, විතත, විතතාතත, සුසිර, ආනත (2) ආනත, විතතාතත, විතත, සුසිර, ආනත
(3) ආනත, සුසිර, විතත, විතතාතත, ආනත (4) ආනත, විතත, සුසිර, විතතාතත, ආනත

(17) පාපල් වේදිකාවේ ප්‍රාපාංගික අවස්ථාවක දී තාක්ෂණික මෙවලම් භාවිතය වැදගත් වේ. ශබ්දය ග්‍රහණය කරගැනීමේ සිට බාහිර පරිසරයට මුදා හැරීම දක්වා පොදුගත්තා තාක්ෂණික මෙවලම් පරිඥතාවය පිළිවෙල කෝරන්න.
(1) මයික්‍රෆෝනය, මික්සරය, ඇම්ප්, බෆල් (2) මයික්‍රෆෝනය, බෆල්, මික්සර්, ඇම්ප්
(3) මයික්‍රෆෝනය, ඇම්ප්, බෆල්, මික්සර් (4) මයික්‍රෆෝනය, මික්සර්, බෆල්, ඇම්ප්

(18) ස රි / පා - ර / අ නි / ශා න්ත /
මෙම ගී පාදයට ගැළපෙන හින්දුස්ථානි තාලය සහ දේශීය කිත වනුයේ,
(1) ත්‍රිතාලය හා මහ කති තිතයි. (2) දීප්චන්දී තාලය හා මැදුම් මත දෙතිතයි
(3) ජප් තාලය හා සුළු මැදුම් දෙතිතයි. (4) දාදරා තාලය හා මැදුම් තනි කිතයි.

(19) දේශීය ජන ගායනා හා සම්බන්ධ කරුණු කිහිපයක් පහත දැක්වේ.
A. මහතුවර ප්‍රගතේ පෝෂණය විය.
B. දකුණු ඉන්දීය සංගීත ආභාෂය ලැබී ඇත.
C. සංකීර්ණ තාල මාලාවලින් යුක්ත ය.
ඉහත A, B, C කරුණුවලට පොදු ගායනාවන් වනුයේ,
(1) ප්‍රගස්ති, හටන් කාව්‍ය, නූර්ති (2) වන්නම්, හටන් කාව්‍ය. නූර්ති
(3) ප්‍රගජ්ති, නූර්ති, වන්නම් (4) වන්නම්, ප්‍රගස්ති, හටන් කාව්‍ය

(20) පහත දැක්වෙනුයේ C, F, G මේජර් ස්කේලයන්ට අයත් ස්වරයි.
C - ස රි ග ම ප ධ නි ස
F - ම ප ධ නි ස රි ග ම
G - ප ධ නි ස රි ග ම ප
ඉහත F මේජර් හා G මේජර් ස්කේලයන් නිවැරදි වීමට වෙනස් යුතු ස්වර වනුයේ,
(1) නිවර ම පහ කෝමල රි (2) කෝමල නි සහ නිවර ම
(3) කෝමල ධ සහ කෝමල ග (4) නිවර ම සහ කෝමල ධ

II කොටස

- පළමු ප්‍රශ්නය ඇතුළුව ප්‍රශ්න පහකට පිළිතුරු සපයන්න.

(01) පහත දක්වා ඇත්තේ නිර්දේශිත රාග කුහකට අයත් මුඛ්‍යාංගයන් ය.

A - ග රි , ග ප , ට , නි ඝ

B - ස ඝ රි රි , ගු ගු ම ම , ප -

C - ග රි , ඝ ධ , ඝ රි ඟ , ප ග , ධ ප ග , රි ඝ

(i) ඉහත මුඛ්‍යාංගයට අයත් රාග පිළිවෙලින් නම් කරන්න.

(ii) ඉහත රාග අතරින් A හෝ B රාගයේ,

ආරෝහණ / අවරෝහණ / මේලය / ජාතිය / වාදී / සංවාදී ස්වර ලියන්න.

(iii) ඔබ තෝරාගත් රාගයක මධ්‍යලය ගීතයේ ප්‍රාරම්භ කොටස ස්වර ප්‍රස්තාර කරන්න.

(02) (i) ස්වර ප්‍රවරු සංගීත භාණ්ඩ අතර ජනප්‍රිය භාණ්ඩයක් වන පර්සියාව පැරණි සංගීතඥයන් මනුලව යොදාගත් අවස්ථා තුනක් ලියන්න.

(ii) ප ප ම ම / ග ග රි රි / ස රි ග ම / ප - - - / මේම ස්වර පාදය මධ්‍යම භාවයෙන් හා පංචම භාවයෙන් ලියන්න.

(iii) අපරදිග සංගීත භාණ්ඩ ප්‍රධාන වශයෙන් බෙදා ඇති කොටස් කුන නම් කරන්න.

(iv) ඔබ තෝරාගත් එක් කොටසක් සඳහා නිදසුන් දෙකක් ලියා දක්වන්න.

(03) පහත දක්වා ඇත්තේ මෙරට ප්‍රචලිත ජන ගී අතර සේ ගී වර්ගයට අයත් ගී පාද කුනකි.

A - මෝරා බිජයෙනා

B - ලක්ෂ්මි බුජ වාසා

C - තොමෝදින් විකුම් පාලා

(i) එම ගීත වර්ග කුන නම් කරන්න.

(ii) නම් කරන ලද ගීවලට පොදු වූ සුවිශේෂී ලක්ෂණ තෙතරක් ලියන්න.


(iii) එම ගී අතුරින් ඔබ තෝරාගත් එක් ගීයක මුල් කොටස ලියන්න.


(iv) ඉහත ගී වර්ග අතරින් කුනාමක් සහිතව ගැයෙන ගී වර්ගය නම් කරන්න.


(04) (i) පෙරදිග සංගීතයේ යෙදෙන ශුද්ධ ස්වර කෝමල ස්වර හා තීව්‍ර ස්වර බටහිර සංගීතයේ දී හඳුන්වන නම් හා සංකේත ලියන්න.


(ii) ග - ම / ප - ග / ම - ග / රි - - - / යන ගී පාදය අපරදිග සංගීත ක්‍රමයට අනුව ප්‍රස්තාර කර ඊට අදාළ Time signature එකද ලියන්න.

(iii) පහත සඳහන් අපරදිග සංගීතයට අයත් සංකේත නම් කරන්න.

(a) 

(b) 

(c) 

(d) 

(iv) $B^{\flat}$ මේජර් ස්කේලයට අයත් ස්වර ලියන්න.

(05) (i) ලංකාවේ තණ්ඩායම් ගීයේ නිර්මාතෘවරයා කවුද?

(ii) ශ්‍රී ලංකාවේ මුල්ම ගායක තණ්ඩායම් දෙක නම් කරන්න.

(iii) ත්‍රී පිස්ටරස් සහ ජිප්සීස් තණ්ඩායම් ගැයූ ගීත එක බැගින් නම් කරන්න.

(iv) ලෝක ප්‍රසිද්ධ "ABBA" සංගීත තණ්ඩායම ගැයූ ගීතයක් නම් කරන්න.

(v) ඔබ දන්නා තණ්ඩායම් ගීතයක පාද තනරක් ලියන්න.

(06) වරහන් තුළ ඇති පිළිතුරු කෙටිවස් උපයෝගී කර ගනිමින් පහත සඳහන් ඡේද කොටස සම්පූර්ණ කර මෙම පිළිතුරු පත්‍රයෙහි ලියන්න.

(යුගලයක්, බැලෙන්ව, එකෝඩියනය, සුසිර, තල්ලු කිරීමෙන්)

(i) ..... බටහිරින් ආරම්භව ලොව පුරා ව්‍යාප්ත වී ඇති ස්වර සුවරු භාණ්ඩයකි. මෙය ..... වාද්‍ය භාණ්ඩ ගණයට අයත් ය. මෙහි ..... ඇදීමෙන් හා ..... පන දෙආකාරයෙන්ම ස්වර නිකුත් වන සේ තළා හොඳා ඇත. සෑම විටම එක් ස්වරයක් සඳහා තලා ..... සම්බන්ධ කර ඇත.

(ii) C major හා F major chords වලට අයත් ස්වර ලියන්න.

(iii) විදුලි ඔගනය පිළිබඳ කෙටියෙන් පැහැදිලි කරන්න.